Содержание

Задача 1 3

Задача 2 5

Задача 3 9

Задача 4 11

Задача 5 14

Задача 6 16

Задача 7 19

Задача 8 22

Задача 9 27

Задача 10 30

Задача 11 33

Задача 12 35

Задача 13 39

Задача 14 42

Ответы 45

Задача 1

1. На координатной прямой отмечены числа x и y.

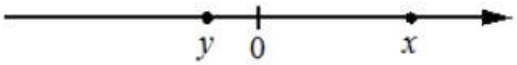

Какое из приведённых утверждений для этих чисел **неверно**?

1) $x + y < 0$
2) $xy^2 > 0$
3) $x - y > 0$
4) $x^2y < 0$

2. На координатной прямой отмечены числа a и b.

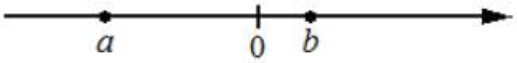

Какое из приведённых утверждений для этих чисел **неверно**?

1) $ab^2 > 0$
2) $b - a > 0$
3) $ab < 0$
4) $a + b < 0$

3. На координатной прямой отмечены числа x и y.

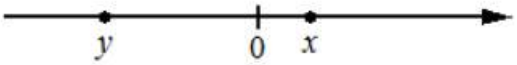

Какое из приведённых утверждений для этих чисел **неверно**?

1) $x^2y < 0$
2) $xy^2 > 0$
3) $x + y > 0$
4) $y - x < 0$

4. На координатной прямой отмечены числа a и b.

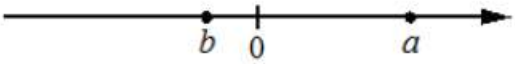

Какое из приведённых утверждений для этих чисел **неверно**?

1) $ab < 0$
2) $ab^2 > 0$
3) $a + b > 0$
4) $a - b < 0$

5. На координатной прямой отмечены числа x и y.

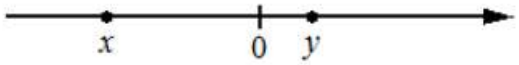

Какое из приведённых утверждений для этих чисел **неверно**?

1) $xy < 0$
2) $x^2y > 0$
3) $x + y > 0$
4) $x - y < 0$

6. На координатной прямой отмечены числа a и b.

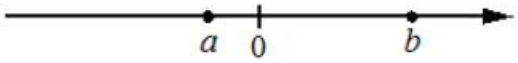

Какое из приведённых утверждений для этих чисел **неверно**?

1) $a + b > 0$
2) $a - b < 0$
3) $ab^2 < 0$
4) $ab > 0$

7. На координатной прямой отмечены числа a и b.

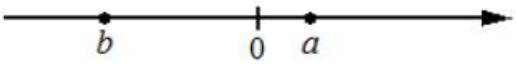

Какое из приведённых утверждений для этих чисел **неверно**?

1) $ab^2 < 0$
2) $a - b > 0$
3) $a + b < 0$
4) $ab < 0$

8. На координатной прямой отмечены числа x и y.

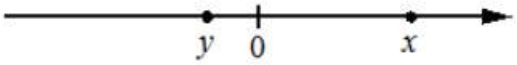

Какое из приведённых утверждений для этих чисел **неверно**?

1) $x + y > 0$
2) $xy > 0$
3) $y - x < 0$
4) $x^2y < 0$

9. На координатной прямой отмечены числа x и y.

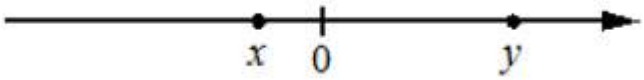

Какое из приведённых утверждений для этих чисел **неверно**?

1) $y - x < 0$
2) $x^2y > 0$
3) $xy < 0$
4) $x + y > 0$

Задача 2

1. Одно из чисел $\frac{55}{19}$, $\frac{64}{19}$, $\frac{72}{19}$, $\frac{79}{19}$ отмечено на прямой точкой.

Какое это число?

1) $\frac{55}{19}$
2) $\frac{64}{19}$
3) $\frac{72}{19}$
4) $\frac{79}{19}$

2. Одно из чисел $\frac{58}{13}$, $\frac{69}{13}$, $\frac{76}{13}$, $\frac{83}{13}$ отмечено на прямой точкой.

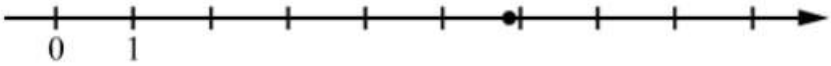

Какое это число?

1) $\frac{58}{13}$
2) $\frac{69}{13}$
3) $\frac{76}{13}$
4) $\frac{83}{13}$

3. Одно из чисел $\frac{81}{17}$, $\frac{90}{17}$, $\frac{99}{17}$, $\frac{108}{17}$ отмечено на прямой точкой.

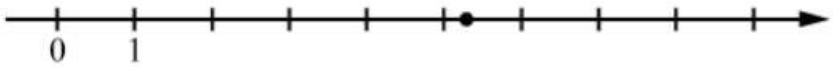

Какое это число?

1) $\frac{81}{17}$

2) $\frac{90}{17}$

3) $\frac{99}{17}$

4) $\frac{108}{17}$

4. Одно из чисел $\frac{29}{9}$, $\frac{34}{9}$, $\frac{38}{9}$, $\frac{43}{9}$ отмечено на прямой точкой.

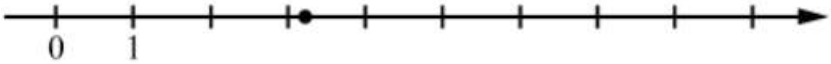

Какое это число?

1) $\frac{29}{9}$

2) $\frac{34}{9}$

3) $\frac{38}{9}$

4) $\frac{43}{9}$

5. Одно из чисел $\frac{31}{11}$, $\frac{37}{11}$, $\frac{41}{11}$, $\frac{47}{11}$ отмечено на прямой точкой.

Какое это число?

1) $\frac{31}{11}$

2) $\frac{37}{11}$

3) $\frac{41}{11}$

4) $\frac{47}{11}$

6. Одно из чисел $\frac{53}{18}$, $\frac{55}{18}$, $\frac{67}{18}$, $\frac{77}{18}$ отмечено на прямой точкой.

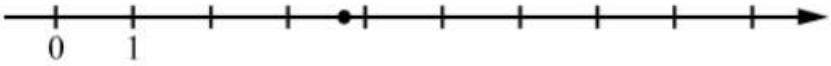

Какое это число?

1) $\frac{53}{18}$

2) $\frac{55}{18}$

3) $\frac{67}{18}$

4) $\frac{77}{18}$

7. Одно из чисел $\frac{41}{13}$, $\frac{48}{13}$, $\frac{55}{13}$, $\frac{62}{13}$ отмечено на прямой точкой.

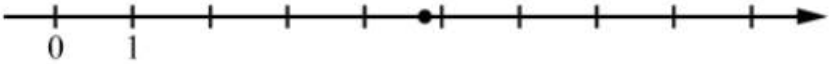

Какое это число?

1) $\frac{41}{13}$

2) $\frac{48}{13}$

3) $\frac{55}{13}$

4) $\frac{62}{13}$

8. Одно из чисел $\frac{75}{23}$, $\frac{85}{23}$, $\frac{97}{23}$, $\frac{110}{23}$ отмечено на прямой точкой.

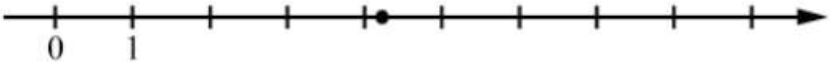

Какое это число?

1) $\frac{75}{23}$

2) $\frac{85}{23}$

3) $\frac{97}{23}$

4) $\frac{110}{23}$

9. Одно из чисел $\frac{33}{7}$, $\frac{37}{7}$, $\frac{41}{7}$, $\frac{43}{7}$ отмечено на прямой точкой.

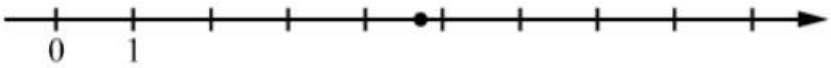

Какое это число?

1) $\frac{33}{7}$

2) $\frac{37}{7}$

3) $\frac{41}{7}$

4) $\frac{43}{7}$

10. Одно из чисел $\frac{71}{15}$, $\frac{79}{15}$, $\frac{86}{15}$, $\frac{92}{15}$ отмечено на прямой точкой.

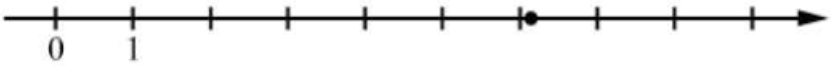

Какое это число?

1) $\frac{71}{15}$

2) $\frac{79}{15}$

3) $\frac{86}{15}$

4) $\frac{92}{15}$

11. Одно из чисел $\frac{73}{22}$, $\frac{83}{22}$, $\frac{93}{22}$, $\frac{113}{22}$ отмечено на прямой точкой.

Какое это число?

1) $\frac{73}{22}$

2) $\frac{83}{22}$

3) $\frac{93}{22}$

4) $\frac{113}{22}$

Задача 3

1. Между какими целыми числами заключено число $\frac{110}{13}$?
   1) 8 и 9
   2) 9 и 10
   3) 10 и 11
   4) 11 и 12

2. Между какими целыми числами заключено число $\frac{170}{19}$?
   1) 8 и 9
   2) 9 и 10
   3) 10 и 11
   4) 11 и 12

3. Между какими целыми числами заключено число $\frac{131}{12}$?
   1) 10 и 11
   2) 11 и 12
   3) 12 и 13
   4) 13 и 14

4. Между какими целыми числами заключено число $\frac{140}{17}$?
   1) 5 и 6
   2) 6 и 7
   3) 7 и 8
   4) 8 и 9

5. Между какими целыми числами заключено число $\frac{130}{11}$?
   1) 10 и 11
   2) 11 и 12
   3) 12 и 13
   4) 13 и 14

6. Между какими целыми числами заключено число $\frac{230}{19}$?
   1) 11 и 12
   2) 12 и 13
   3) 13 и 14
   4) 14 и 15

7. Между какими целыми числами заключено число $\frac{172}{15}$?
   1) 9 и 10
   2) 10 и 11
   3) 11 и 12
   4) 12 и 13

8. Между какими целыми числами заключено число $\frac{190}{17}$?
   1) 10 и 11
   2) 11 и 12
   3) 12 и 13
   4) 13 и 14

9. Между какими целыми числами заключено число $\frac{160}{11}$?
   1) 12 и 13
   2) 13 и 14
   3) 14 и 15
   4) 15 и 16

10. Между какими целыми числами заключено число $\frac{124}{15}$?
   1) 8 и 9
   2) 9 и 10
   3) 10 и 11
   4) 11 и 12

Задача 4

1. Какое из данных ниже чисел принадлежит отрезку $[3; 4]$?

   1) $\frac{45}{19}$
   2) $\frac{52}{19}$
   3) $\frac{68}{19}$
   4) $\frac{77}{19}$

2. Какое из данных ниже чисел принадлежит отрезку $[6; 7]$?

   1) $\frac{67}{12}$
   2) $\frac{71}{12}$
   3) $\frac{83}{12}$
   4) $\frac{91}{12}$

3. Какое из данных ниже чисел принадлежит отрезку $[4; 5]$?

   1) $\frac{49}{15}$
   2) $\frac{52}{15}$
   3) $\frac{58}{15}$
   4) $\frac{71}{15}$

4. Какое из данных ниже чисел принадлежит отрезку $[7; 8]$?

   1) $\frac{58}{9}$
   2) $\frac{62}{9}$
   3) $\frac{70}{9}$
   4) $\frac{79}{9}$

5. Какое из данных ниже чисел принадлежит отрезку $[5; 6]$?

   1) $\frac{68}{13}$
   2) $\frac{79}{13}$
   3) $\frac{82}{13}$
   4) $\frac{89}{13}$

6. Какое из данных ниже чисел принадлежит отрезку $[3; 4]$?

   1) $\frac{47}{14}$
   2) $\frac{57}{14}$
   3) $\frac{61}{14}$
   4) $\frac{65}{14}$

7. Какое из данных ниже чисел принадлежит отрезку $[4; 5]$?

   1) $\frac{58}{17}$
   2) $\frac{72}{17}$
   3) $\frac{87}{17}$
   4) $\frac{91}{17}$

8. Какое из данных ниже чисел принадлежит отрезку $[7; 8]$?

   1) $\frac{69}{11}$
   2) $\frac{80}{11}$
   3) $\frac{90}{11}$
   4) $\frac{92}{11}$

9. Какое из данных ниже чисел принадлежит отрезку $[8; 9]$?

   1) $\frac{46}{7}$
   2) $\frac{53}{7}$
   3) $\frac{55}{7}$
   4) $\frac{61}{7}$

10. Какое из данных ниже чисел принадлежит отрезку $[6; 7]$?

   1) $\frac{68}{13}$
   2) $\frac{82}{13}$
   3) $\frac{92}{13}$
   4) $\frac{101}{13}$

Задача 5

1. На координатной прямой отмечены точки A, B, C, D. Одна из них соответствует числу $\sqrt{28}$. Какая это точка?

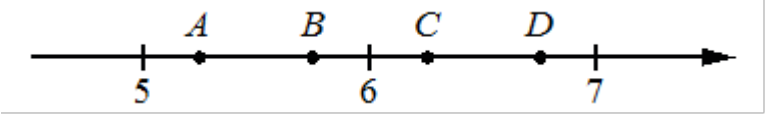

1) Точка A
2) Точка B
3) Точка C
4) Точка D

2. На координатной прямой отмечены точки A, B, C, D. Одна из них соответствует числу $\sqrt{52}$. Какая это точка?

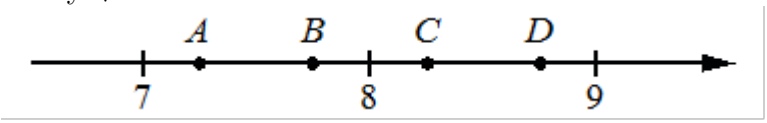

1) Точка A
2) Точка B
3) Точка C
4) Точка D

3. На координатной прямой отмечены точки A, B, C, D. Одна из них соответствует числу $\sqrt{68}$. Какая это точка?

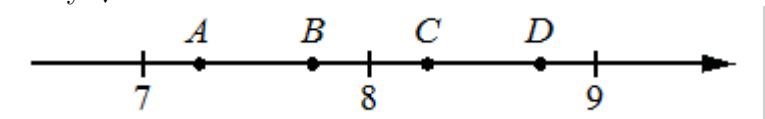

1) Точка A
2) Точка B
3) Точка C
4) Точка D

4. На координатной прямой отмечены точки A, B, C, D. Одна из них соответствует числу $\sqrt{45}$. Какая это точка?

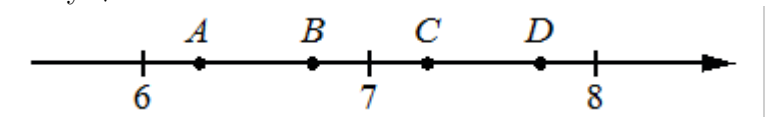

1) Точка A
2) Точка B
3) Точка C
4) Точка D

5. На координатной прямой отмечены точки A, B, C, D. Одна из них соответствует числу $\sqrt{85}$. Какая это точка?

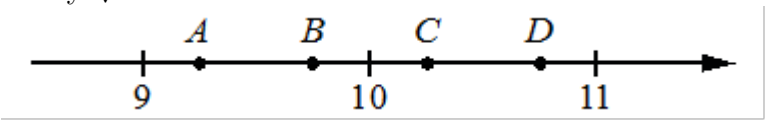

1) Точка A
2) Точка B
3) Точка C
4) Точка D

6. На координатной прямой отмечены точки A, B, C, D. Одна из них соответствует числу $\sqrt{39}$. Какая это точка?

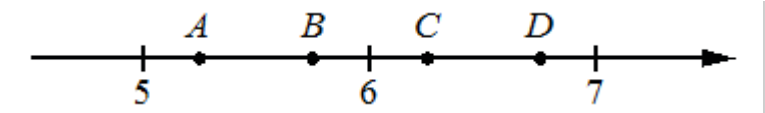

1) Точка A
2) Точка B
3) Точка C
4) Точка D

7. На координатной прямой отмечены точки A, B, C, D. Одна из них соответствует числу $\sqrt{77}$. Какая это точка?

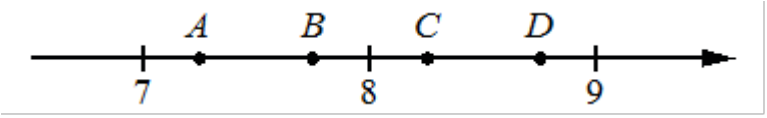

1) Точка A
2) Точка B
3) Точка C
4) Точка D

8. На координатной прямой отмечены точки A, B, C, D. Одна из них соответствует числу $\sqrt{76}$. Какая это точка?

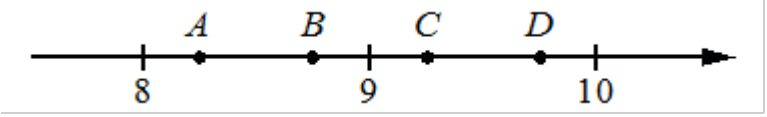

1) Точка A
2) Точка B
3) Точка C
4) Точка D

9. На координатной прямой отмечены точки A, B, C, D. Одна из них соответствует числу $\sqrt{33}$. Какая это точка?

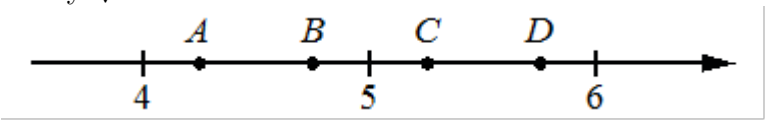

1) Точка A
2) Точка B
3) Точка C
4) Точка D

Задача 6

1. Какое из следующих чисел заключено между числами $\frac{17}{19}$ и $\frac{13}{14}$?
   1) 0,6
   2) 0,7
   3) 0,8
   4) 0,9

2. Какое из следующих чисел заключено между числами $\frac{18}{17}$ и $\frac{17}{15}$?
   1) 1
   2) 1,1
   3) 1,2
   4) 1,3

3. Какое из следующих чисел заключено между числами $\frac{8}{3}$ и $\frac{11}{4}$?
   1) 2,7
   2) 2,8
   3) 2,9
   4) 3

4. Какое из следующих чисел заключено между числами $\frac{17}{15}$ и $\frac{16}{13}$?
   1) 1,2
   2) 1,3
   3) 1,4
   4) 1,5

5. Какое из следующих чисел заключено между числами $\frac{15}{11}$ и $\frac{13}{9}$?
   1) 1,4
   2) 1,5
   3) 1,6
   4) 1,7

6. Какое из следующих чисел заключено между числами $\frac{2}{17}$ и $\frac{4}{19}$?
   1) 0
   2) 0,1
   3) 0,2
   4) 0,3

7. Какое из следующих чисел заключено между числами $\frac{8}{13}$ и $\frac{12}{17}$?
   1) 0,6
   2) 0,7
   3) 0,8
   4) 0,9

8. Какое из следующих чисел заключено между числами $\frac{9}{19}$ и $\frac{5}{9}$?
   1) 0,2
   2) 0,3
   3) 0,4
   4) 0,5

9. Какое из следующих чисел заключено между числами $\frac{4}{11}$ и $\frac{7}{17}$?
   1) 0,1
   2) 0,2
   3) 0,3
   4) 0,4

10. Какое из следующих чисел заключено между числами $\frac{5}{17}$ и $\frac{7}{19}$?
    1) 0,2
    2) 0,3
    3) 0,4
    4) 0,5

11. Какое из следующих чисел заключено между числами $\frac{8}{15}$ и $\frac{12}{19}$?
    1) 0,4
    2) 0,5
    3) 0,6
    4) 0,7

12. Какое из следующих чисел заключено между числами $\frac{8}{11}$ и $\frac{14}{17}$?
    1) 0,6
    2) 0,7
    3) 0,8
    4) 0,9

13. Какое из следующих чисел заключено между числами $\frac{19}{8}$ и $\frac{17}{7}$?
    1) 2,3
    2) 2,4
    3) 2,5
    4) 2,6

Задача 7

1. Между какими числами заключено число $\sqrt{73}$?
   1) 8 и 9
   2) 72 и 74
   3) 24 и 26
   4) 4 и 5

2. Между какими числами заключено число $\sqrt{67}$?
   1) 8 и 9
   2) 22 и 24
   3) 4 и 5
   4) 66 и 68

3. Между какими числами заключено число $\sqrt{89}$?
   1) 4 и 5
   2) 29 и 31
   3) 9 и 10
   4) 88 и 90

4. Между какими числами заключено число $\sqrt{28}$?
   1) 5 и 6
   2) 2 и 3
   3) 10 и 12
   4) 27 и 29

5. Между какими числами заключено число $\sqrt{59}$?
   1) 7 и 8
   2) 29 и 30
   3) 58 и 60
   4) 3 и 4

6. Между какими числами заключено число $\sqrt{72}$?
   1) 24 и 26
   2) 8 и 9
   3) 71 и 73
   4) 4 и 5

7. Между какими числами заключено число $\sqrt{58}$?
   1) 19 и 21
   2) 57 и 59
   3) 3 и 4
   4) 7 и 8

8. Между какими числами заключено число $\sqrt{27}$?
   1) 2 и 3
   2) 5 и 6
   3) 12 и 14
   4) 26 и 28

9. Между какими числами заключено число $\sqrt{56}$?
   1) 55 и 57
   2) 3 и 4
   3) 19 и 21
   4) 7 и 8

10. Между какими числами заключено число $\sqrt{83}$?
    1) 4 и 5
    2) 27 и 29
    3) 82 и 84
    4) 9 и 10

11. Между какими числами заключено число $\sqrt{78}$?
    1) 25 и 27
    2) 4 и 5
    3) 77 и 79
    4) 8 и 9

12. Между какими числами заключено число $\sqrt{98}$?
    1) 4 и 5
    2) 9 и 10
    3) 31 и 33
    4) 97 и 99

13. Между какими числами заключено число $\sqrt{60}$?
    1) 20 и 22
    2) 7 и 8
    3) 59 и 61
    4) 3 и 4

14. Между какими числами заключено число $\sqrt{57}$?
    1) 3 и 4
    2) 7 и 8
    3) 28 и 29
    4) 56 и 58

15. Между какими числами заключено число $\sqrt{30}$?
    1) 11 и 13
    2) 5 и 6
    3) 2 и 3
    4) 29 и 31

Задача 8

1. Одно из чисел $\frac{10}{23}$, $\frac{11}{23}$, $\frac{13}{23}$, $\frac{14}{23}$ отмечено на прямой точкой.

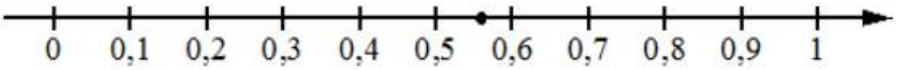

Какое это число?

1) $\frac{10}{23}$
2) $\frac{11}{23}$
3) $\frac{13}{23}$
4) $\frac{14}{23}$

2. Одно из чисел $\frac{3}{11}$, $\frac{7}{11}$, $\frac{8}{11}$, $\frac{13}{11}$ отмечено на прямой точкой.

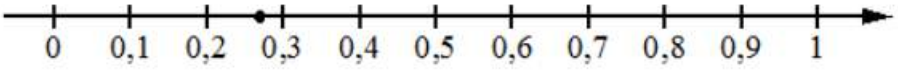

Какое это число?

1) $\frac{3}{11}$
2) $\frac{7}{11}$
3) $\frac{8}{11}$
4) $\frac{13}{11}$

3. Одно из чисел $\frac{6}{23}$, $\frac{9}{23}$, $\frac{10}{23}$, $\frac{12}{23}$ отмечено на прямой точкой.

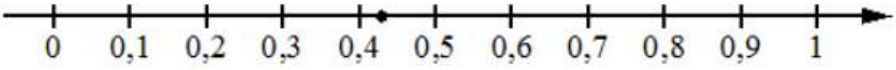

Какое это число?

1) $\frac{6}{23}$
2) $\frac{9}{23}$
3) $\frac{10}{23}$
4) $\frac{12}{23}$

4. Одно из чисел $\frac{2}{7}$, $\frac{4}{7}$, $\frac{10}{7}$, $\frac{11}{7}$ отмечено на прямой точкой.

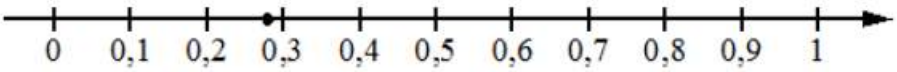

Какое это число?

1) $\frac{2}{7}$

2) $\frac{4}{7}$

3) $\frac{10}{7}$

4) $\frac{11}{7}$

5. Одно из чисел $\frac{4}{11}$, $\frac{8}{11}$, $\frac{9}{11}$, $\frac{13}{11}$ отмечено на прямой точкой.

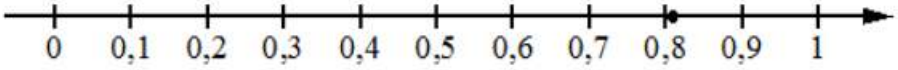

Какое это число?

1) $\frac{4}{11}$

2) $\frac{8}{11}$

3) $\frac{9}{11}$

4) $\frac{13}{11}$

6. Одно из чисел $\frac{10}{17}$, $\frac{11}{17}$, $\frac{13}{17}$, $\frac{14}{17}$ отмечено на прямой точкой.

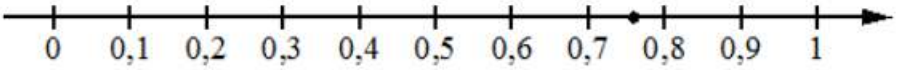

Какое это число?

1) $\frac{10}{17}$

2) $\frac{11}{17}$

3) $\frac{13}{17}$

4) $\frac{14}{17}$

7. Одно из чисел $\frac{2}{23}$, $\frac{3}{23}$, $\frac{5}{23}$, $\frac{11}{23}$ отмечено на прямой точкой.

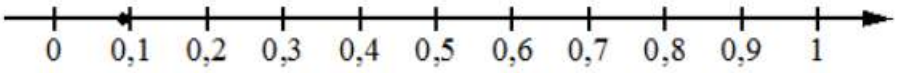

Какое это число?

1) $\frac{2}{23}$

2) $\frac{3}{23}$

3) $\frac{5}{23}$

4) $\frac{11}{23}$

8. Одно из чисел $\frac{6}{23}$, $\frac{7}{23}$, $\frac{11}{23}$, $\frac{12}{23}$ отмечено на прямой точкой.

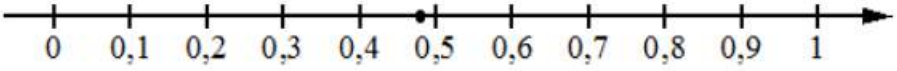

Какое это число?

1) $\frac{6}{23}$

2) $\frac{7}{23}$

3) $\frac{11}{23}$

4) $\frac{12}{23}$

9. Одно из чисел $\frac{2}{17}$, $\frac{4}{17}$, $\frac{8}{17}$, $\frac{9}{17}$ отмечено на прямой точкой.

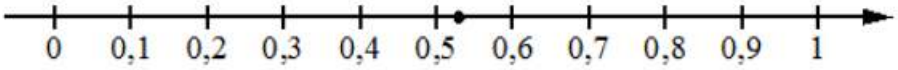

Какое это число?

1) $\frac{2}{17}$

2) $\frac{4}{17}$

3) $\frac{8}{17}$

4) $\frac{9}{17}$

10. Одно из чисел $\frac{4}{7}$, $\frac{6}{7}$, $\frac{8}{7}$, $\frac{13}{7}$ отмечено на прямой точкой.

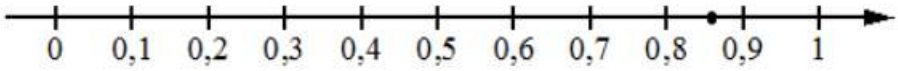

Какое это число?

1) $\frac{4}{7}$

2) $\frac{6}{7}$

3) $\frac{8}{7}$

4) $\frac{13}{7}$

11. Одно из чисел $\frac{3}{17}$, $\frac{4}{17}$, $\frac{8}{17}$, $\frac{14}{17}$ отмечено на прямой точкой.

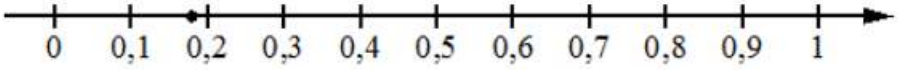

Какое это число?

1) $\frac{3}{17}$

2) $\frac{4}{17}$

3) $\frac{8}{17}$

4) $\frac{14}{17}$

12. Одно из чисел $\frac{5}{9}$, $\frac{11}{9}$, $\frac{13}{9}$, $\frac{14}{9}$ отмечено на прямой точкой.

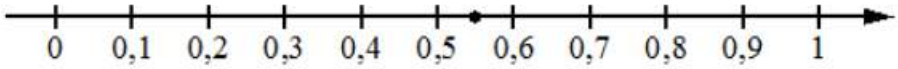

Какое это число?

1) $\frac{5}{9}$

2) $\frac{11}{9}$

3) $\frac{13}{9}$

4) $\frac{14}{9}$

13. Одно из чисел $\frac{2}{13}$, $\frac{7}{13}$, $\frac{9}{13}$, $\frac{11}{13}$ отмечено на прямой точкой.

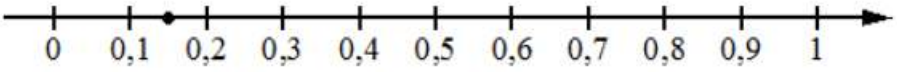

Какое это число?

1) $\frac{2}{13}$

2) $\frac{7}{13}$

3) $\frac{9}{13}$

4) $\frac{11}{13}$

14. Одно из чисел $\frac{6}{11}$, $\frac{9}{11}$, $\frac{13}{11}$, $\frac{14}{11}$ отмечено на прямой точкой.

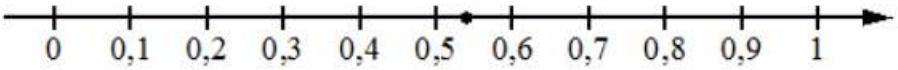

Какое это число?

1) $\frac{6}{11}$

2) $\frac{9}{11}$

3) $\frac{13}{11}$

4) $\frac{14}{11}$

15. Одно из чисел $\frac{3}{13}$, $\frac{9}{13}$, $\frac{10}{13}$, $\frac{12}{13}$ отмечено на прямой точкой.

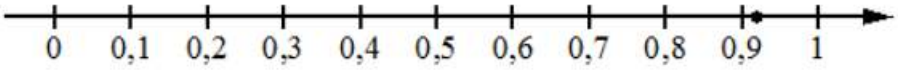

Какое это число?

1) $\frac{3}{13}$

2) $\frac{9}{13}$

3) $\frac{10}{13}$

4) $\frac{12}{13}$

Задача 9

1. Какому из данных промежутков принадлежит число $\frac{5}{7}$?

   1) $[0{,}5; 0{,}6]$

   2) $[0{,}6; 0{,}7]$

   3) $[0{,}7; 0{,}8]$

   4) $[0{,}8; 0{,}9]$

2. Какому из данных промежутков принадлежит число $\frac{2}{7}$?

   1) $[0{,}1; 0{,}2]$

   2) $[0{,}2; 0{,}3]$

   3) $[0{,}3; 0{,}4]$

   4) $[0{,}4; 0{,}5]$

3. Какому из данных промежутков принадлежит число $\frac{2}{9}$?

   1) $[0{,}1; 0{,}2]$

   2) $[0{,}2; 0{,}3]$

   3) $[0{,}3; 0{,}4]$

   4) $[0{,}4; 0{,}5]$

4. Какому из данных промежутков принадлежит число $\frac{9}{13}$?

   1) $[0{,}5; 0{,}6]$

   2) $[0{,}6; 0{,}7]$

   3) $[0{,}7; 0{,}8]$

   4) $[0{,}8; 0{,}9]$

5. Какому из данных промежутков принадлежит число $\frac{3}{7}$?

   1) $[0{,}1; 0{,}2]$

   2) $[0{,}2; 0{,}3]$

   3) $[0{,}3; 0{,}4]$

   4) $[0{,}4; 0{,}5]$

6. Какому из данных промежутков принадлежит число $\frac{5}{13}$?

   1) $[0{,}2; 0{,}3]$

   2) $[0{,}3; 0{,}4]$

   3) $[0{,}4; 0{,}5]$

   4) $[0{,}5; 0{,}6]$

7. Какому из данных промежутков принадлежит число $\frac{5}{9}$?

   1) $[0{,}5; 0{,}6]$

   2) $[0{,}6; 0{,}7]$

   3) $[0{,}7; 0{,}8]$

   4) $[0{,}8; 0{,}9]$

8. Какому из данных промежутков принадлежит число $\frac{7}{9}$?

   1) $[0{,}5; 0{,}6]$

   2) $[0{,}6; 0{,}7]$

   3) $[0{,}7; 0{,}8]$

   4) $[0{,}8; 0{,}9]$

9. Какому из данных промежутков принадлежит число $\frac{4}{9}$?

   1) $[0{,}1; 0{,}2]$

   2) $[0{,}2; 0{,}3]$

   3) $[0{,}3; 0{,}4]$

   4) $[0{,}4; 0{,}5]$

10. Какому из данных промежутков принадлежит число $\frac{5}{11}$?

    1) $[0{,}2; 0{,}3]$

    2) $[0{,}3; 0{,}4]$

    3) $[0{,}4; 0{,}5]$

    4) $[0{,}5; 0{,}6]$

11. Какому из данных промежутков принадлежит число $\frac{3}{11}$?

1) $[0{,}1; 0{,}2]$

2) $[0{,}2; 0{,}3]$

3) $[0{,}3; 0{,}4]$

4) $[0{,}4; 0{,}5]$

12. Какому из данных промежутков принадлежит число $\frac{7}{11}$?

1) $[0{,}4; 0{,}5]$

2) $[0{,}5; 0{,}6]$

3) $[0{,}6; 0{,}7]$

4) $[0{,}7; 0{,}8]$

Задача 10

1. На координатной прямой отмечено число a.

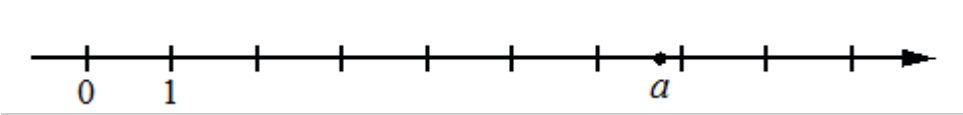

Какое из утверждений для этого числа является верным?

1) $a - 5 < 0$
2) $5 - a < 0$
3) $a - 7 > 0$
4) $6 - a > 0$

2. На координатной прямой отмечено число a.

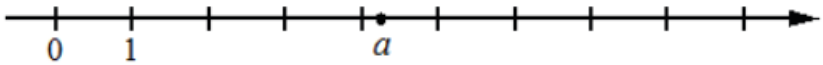

Какое из утверждений для этого числа является верным?

1) $4 - a > 0$
2) $4 - a < 0$
3) $a - 3 < 0$
4) $a - 6 > 0$

3. На координатной прямой отмечено число a.

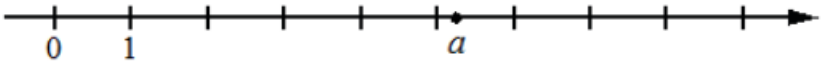

Какое из утверждений для этого числа является верным?

1) $4 - a > 0$
2) $a - 7 < 0$
3) $a - 8 > 0$
4) $8 - a < 0$

4. На координатной прямой отмечено число a.

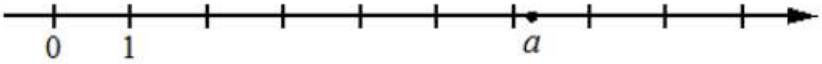

Какое из утверждений для этого числа является верным?

1) $4 - a < 0$
2) $a - 7 > 0$
3) $a - 5 < 0$
4) $6 - a > 0$

5. На координатной прямой отмечено число a.

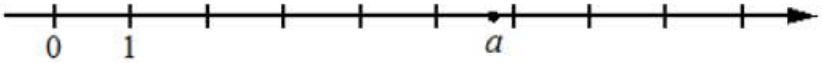

Какое из утверждений для этого числа является верным?

1) $8 - a < 0$
2) $a - 5 < 0$
3) $8 - a > 0$
4) $a - 6 > 0$

6. На координатной прямой отмечено число a.

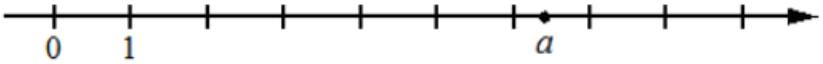

Какое из утверждений для этого числа является верным?

1) $a - 4 < 0$
2) $a - 6 > 0$
3) $6 - a > 0$
4) $7 - a < 0$

7. На координатной прямой отмечено число a.

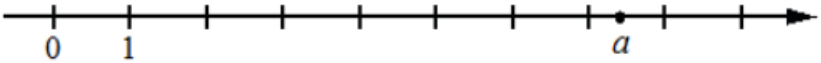

Какое из утверждений для этого числа является верным?

1) $a - 6 < 0$
2) $a - 7 > 0$
3) $6 - a > 0$
4) $8 - a < 0$

8. На координатной прямой отмечено число a.

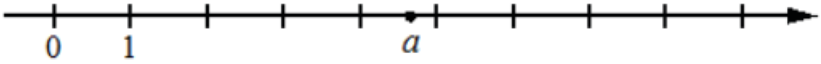

Какое из утверждений для этого числа является верным?

1) $5 - a < 0$
2) $a - 6 > 0$
3) $a - 5 < 0$
4) $4 - a > 0$

9. На координатной прямой отмечено число a.

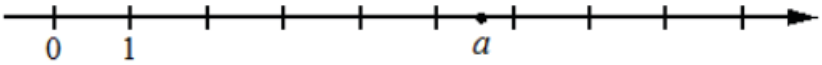

Какое из утверждений для этого числа является верным?

1) $5 - a > 0$
2) $7 - a < 0$
3) $a - 7 < 0$
4) $a - 8 > 0$

10. На координатной прямой отмечено число a.

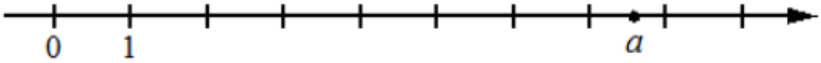

Какое из утверждений для этого числа является верным?

1) $8 - a > 0$
2) $8 - a < 0$
3) $a - 7 < 0$
4) $a - 9 > 0$

Задача 11

1. Какое из данных чисел принадлежит отрезку $[6; 7]$?

   1) $\sqrt{6}$
   2) $\sqrt{7}$
   3) $\sqrt{35}$
   4) $\sqrt{42}$

2. Какое из данных чисел принадлежит отрезку $[5; 6]$?

   1) $\sqrt{5}$
   2) $\sqrt{6}$
   3) $\sqrt{23}$
   4) $\sqrt{31}$

3. Какое из данных чисел принадлежит отрезку $[5; 6]$?

   1) $\sqrt{5}$
   2) $\sqrt{6}$
   3) $\sqrt{24}$
   4) $\sqrt{32}$

4. Какое из данных чисел принадлежит отрезку $[7; 8]$?

   1) $\sqrt{7}$
   2) $\sqrt{8}$
   3) $\sqrt{62}$
   4) $\sqrt{72}$

5. Какое из данных чисел принадлежит отрезку $[6; 7]$?

   1) $\sqrt{6}$
   2) $\sqrt{7}$
   3) $\sqrt{38}$
   4) $\sqrt{50}$

6. Какое из данных чисел принадлежит отрезку $[7; 8]$?

   1) $\sqrt{7}$
   2) $\sqrt{8}$
   3) $\sqrt{45}$
   4) $\sqrt{60}$

7. Какое из данных чисел принадлежит отрезку $[6; 7]$?

   1) $\sqrt{6}$
   2) $\sqrt{7}$
   3) $\sqrt{40}$
   4) $\sqrt{51}$

8. Какое из данных чисел принадлежит отрезку $[5; 6]$?

   1) $\sqrt{5}$
   2) $\sqrt{6}$
   3) $\sqrt{28}$
   4) $\sqrt{41}$

9. Какое из данных чисел принадлежит отрезку $[6; 7]$?

   1) $\sqrt{6}$
   2) $\sqrt{7}$
   3) $\sqrt{46}$
   4) $\sqrt{55}$

10. Какое из данных чисел принадлежит отрезку $[7; 8]$?

    1) $\sqrt{7}$
    2) $\sqrt{8}$
    3) $\sqrt{42}$
    4) $\sqrt{61}$

11. Какое из данных чисел принадлежит отрезку $[5; 6]$?

    1) $\sqrt{5}$

    2) $\sqrt{6}$

    3) $\sqrt{27}$

    4) $\sqrt{37}$

Задача 12

1. На координатной прямой точки A, B, C и D соответствуют числам 0,098; -0,02; 0,09; 0,11.

   Какой точке соответствует число 0,09?
   1) A
   2) B
   3) C
   4) D

2. На координатной прямой точки A, B, C и D соответствуют числам 0,508; 0,85; -0,05; 0,058.

   Какой точке соответствует число 0,058?
   1) A
   2) B
   3) C
   4) D

3. На координатной прямой точки A, B, C и D соответствуют числам 0,0137; 0,103; 0,03; 0,021.

Какой точке соответствует число 0,03?

1) A
2) B
3) C
4) D

4. На координатной прямой точки A, B, C и D соответствуют числам -0,205; -0,052; 0,02; 0,008.

Какой точке соответствует число 0,02?

1) A
2) B
3) C
4) D

5. На координатной прямой точки A, B, C и D соответствуют числам -0,74; -0,047; 0,07; -0,407.

Какой точке соответствует число -0,047?

1) A
2) B
3) C
4) D

6. На координатной прямой точки A, B, C и D соответствуют числам -0,502; 0,25; 0,205; 0,52.

Какой точке соответствует число 0,25?

1) A
2) B
3) C
4) D

7. На координатной прямой точки A, B, C и D соответствуют числам -0,39; -0,09; -0,93; 0,03.

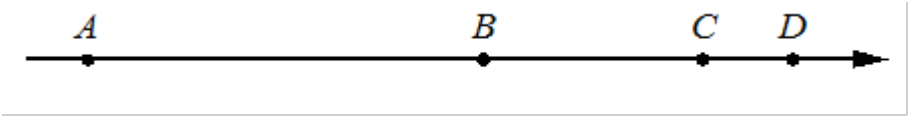

Какой точке соответствует число -0,09?

1) A
2) B
3) C
4) D

8. На координатной прямой точки A, B, C и D соответствуют числам 0,29; -0,02; 0,109; 0,013.

Какой точке соответствует число 0,109?

1) A
2) B
3) C
4) D

9. На координатной прямой точки A, B, C и D соответствуют числам -0,201; -0,012; -0,304; 0,021.

Какой точке соответствует число -0,304?

1) A
2) B
3) C
4) D

10. На координатной прямой точки A, B, C и D соответствуют числам -0,032; 0,023; 0,302; -0,203.

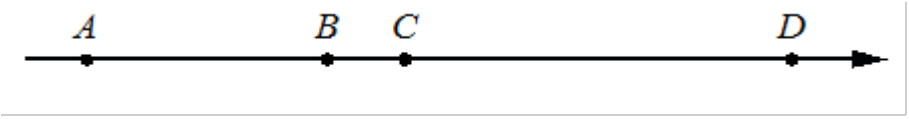

Какой точке соответствует число -0,203?

1) A
2) B
3) C
4) D

11. На координатной прямой точки A, B, C и D соответствуют числам 0,271; -0,112; 0,041; -0,267.

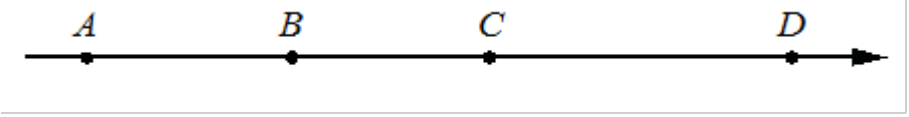

Какой точке соответствует число 0,271?

1) A
2) B
3) C
4) D

12. На координатной прямой точки A, B, C и D соответствуют числам 0,1032; -0,031; -0,01; -0,104.

Какой точке соответствует число -0,031?

1) A
2) B
3) C
4) D

Задача 13

1. Одно из чисел $\sqrt{29}$, $\sqrt{33}$, $\sqrt{39}$, $\sqrt{44}$ отмечено на прямой точкой A.

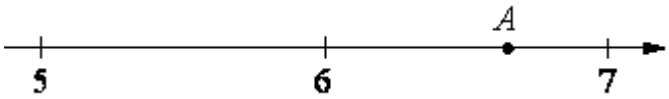

1) $\sqrt{29}$
2) $\sqrt{33}$
3) $\sqrt{39}$
4) $\sqrt{44}$

2. Одно из чисел $\sqrt{29}$, $\sqrt{34}$, $\sqrt{39}$, $\sqrt{45}$ отмечено на прямой точкой A.

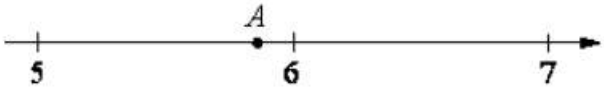

1) $\sqrt{29}$
2) $\sqrt{34}$
3) $\sqrt{39}$
4) $\sqrt{45}$

3. Одно из чисел $\sqrt{41}$, $\sqrt{48}$, $\sqrt{53}$, $\sqrt{63}$ отмечено на прямой точкой A.

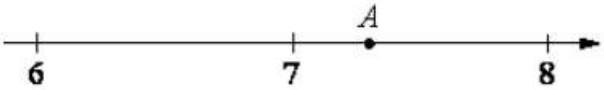

1) $\sqrt{41}$
2) $\sqrt{48}$
3) $\sqrt{53}$
4) $\sqrt{63}$

4. Одно из чисел $\sqrt{39}$, $\sqrt{44}$, $\sqrt{50}$, $\sqrt{62}$ отмечено на прямой точкой A.

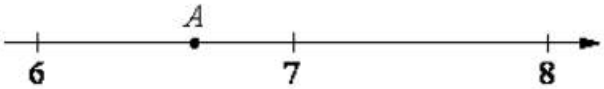

1) $\sqrt{39}$
2) $\sqrt{44}$
3) $\sqrt{50}$
4) $\sqrt{62}$

5. Одно из чисел $\sqrt{18}$, $\sqrt{24}$, $\sqrt{26}$, $\sqrt{32}$ отмечено на прямой точкой A.

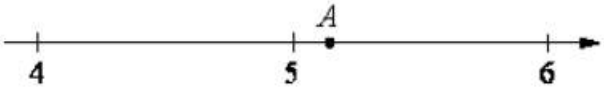

1) $\sqrt{18}$
2) $\sqrt{24}$
3) $\sqrt{26}$
4) $\sqrt{32}$

6. Одно из чисел $\sqrt{40}$, $\sqrt{46}$, $\sqrt{53}$, $\sqrt{58}$ отмечено на прямой точкой A.

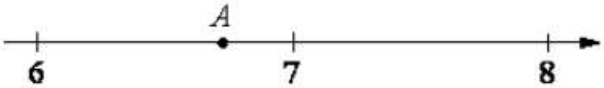

1) $\sqrt{40}$
2) $\sqrt{46}$
3) $\sqrt{53}$
4) $\sqrt{58}$

7. Одно из чисел $\sqrt{28}$, $\sqrt{33}$, $\sqrt{38}$, $\sqrt{47}$ отмечено на прямой точкой A.

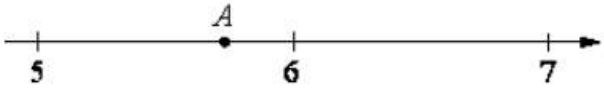

1) $\sqrt{28}$
2) $\sqrt{33}$
3) $\sqrt{38}$
4) $\sqrt{47}$

8. Одно из чисел $\sqrt{37}$, $\sqrt{47}$, $\sqrt{50}$, $\sqrt{62}$ отмечено на прямой точкой A.

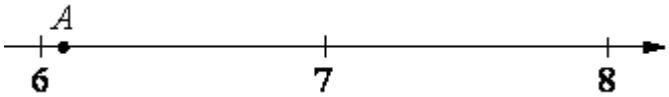

1) $\sqrt{37}$
2) $\sqrt{47}$
3) $\sqrt{50}$
4) $\sqrt{62}$

9. Одно из чисел $\sqrt{28}$, $\sqrt{32}$, $\sqrt{39}$, $\sqrt{47}$ отмечено на прямой точкой A.

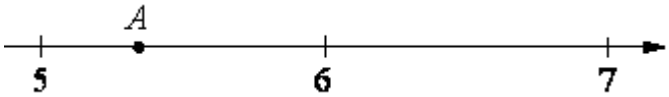

1) $\sqrt{28}$
2) $\sqrt{32}$
3) $\sqrt{39}$
4) $\sqrt{47}$

10. Одно из чисел $\sqrt{17}$, $\sqrt{22}$, $\sqrt{28}$, $\sqrt{32}$ отмечено на прямой точкой A.

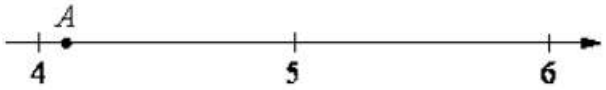

1) $\sqrt{17}$
2) $\sqrt{22}$
3) $\sqrt{28}$
4) $\sqrt{32}$

Задача 14

1. На координатной прямой отмечены точки A, B, C, D. Одна из них соответствует числу $\frac{100}{19}$. Какая это точка?

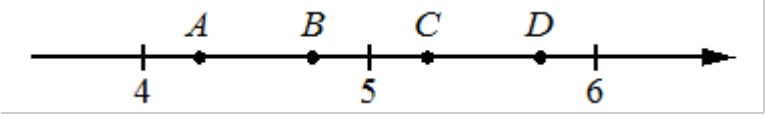

1) Точка A
2) Точка B
3) Точка C
4) Точка D

2. На координатной прямой отмечены точки A, B, C, D. Одна из них соответствует числу $\frac{100}{21}$. Какая это точка?

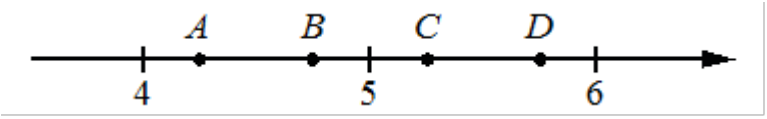

1) Точка A
2) Точка B
3) Точка C
4) Точка D

3. На координатной прямой отмечены точки A, B, C, D. Одна из них соответствует числу $\frac{58}{7}$. Какая это точка?

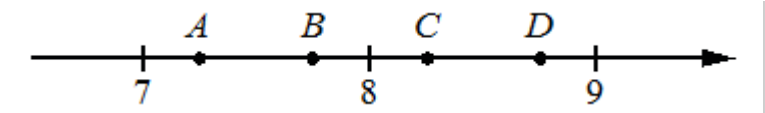

1) Точка A
2) Точка B
3) Точка C
4) Точка D

4. На координатной прямой отмечены точки A, B, C, D. Одна из них соответствует числу $\frac{73}{14}$. Какая это точка?

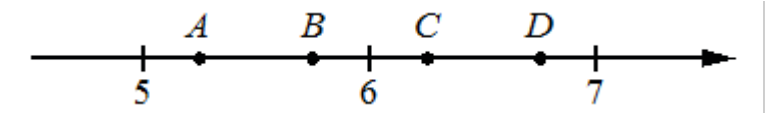

1) Точка A
2) Точка B
3) Точка C
4) Точка D

5. На координатной прямой отмечены точки A, B, C, D. Одна из них соответствует числу $\frac{92}{9}$. Какая это точка?

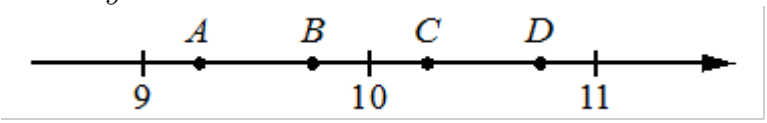

1) Точка A
2) Точка B
3) Точка C
4) Точка D

6. На координатной прямой отмечены точки A, B, C, D. Одна из них соответствует числу $\frac{63}{11}$. Какая это точка?

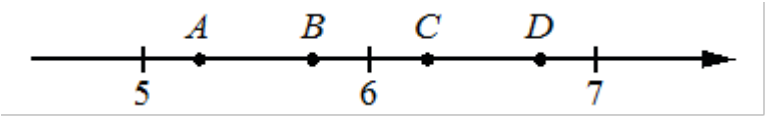

1) Точка A
2) Точка B
3) Точка C
4) Точка D

7. На координатной прямой отмечены точки A, B, C, D. Одна из них соответствует числу $\frac{132}{17}$. Какая это точка?

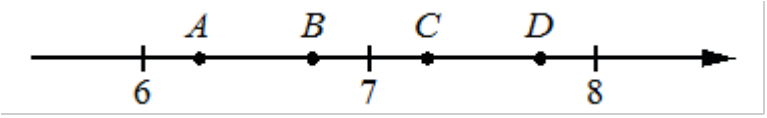

1) Точка A
2) Точка B
3) Точка C
4) Точка D

8. На координатной прямой отмечены точки A, B, C, D. Одна из них соответствует числу $\frac{80}{11}$. Какая это точка?

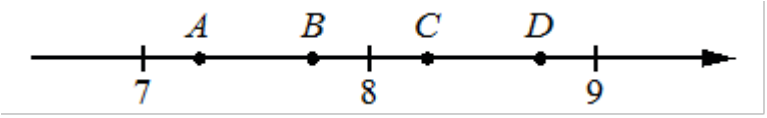

1) Точка A
2) Точка B
3) Точка C
4) Точка D

9. На координатной прямой отмечены точки A, B, C, D. Одна из них соответствует числу $\frac{116}{15}$. Какая это точка?

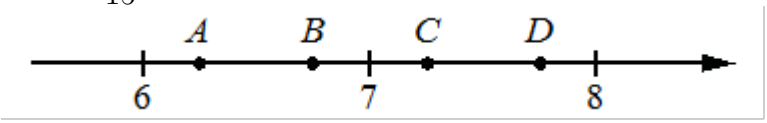

1) Точка A
2) Точка B
3) Точка C
4) Точка D

10. На координатной прямой отмечены точки A, B, C, D. Одна из них соответствует числу $\frac{107}{13}$. Какая это точка?

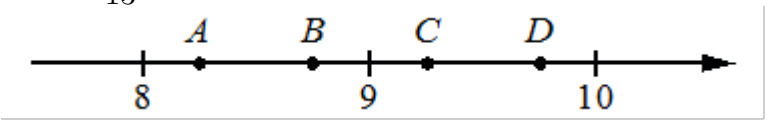

1) точка A
2) точка B
3) точка C
4) точка D

Ответы

Задача 1

1. 1
2. 1
3. 3
4. 4
5. 3
6. 4
7. 1
8. 2
9. 1

Задача 2

1. 2
2. 3
3. 2
4. 1
5. 1
6. 3
7. 4
8. 3
9. 1
10. 4
11. 2

Задача 3

1. 1
2. 1
3. 1
4. 4
5. 2
6. 2
7. 3
8. 2
9. 3
10. 1

Задача 4

1. 3
2. 3
3. 4
4. 3
5. 1
6. 1
7. 2
8. 2
9. 4
10. 2

Задача 5

1. 1
2. 1
3. 3
4. 2
5. 1
6. 3
7. 4
8. 2
9. 4

Задача 6

1. 4
2. 2
3. 1
4. 1
5. 1
6. 3
7. 2
8. 4
9. 4
10. 2
11. 3
12. 3
13. 2

Задача 7

1. 1
2. 1
3. 3
4. 1
5. 1
6. 2
7. 4
8. 2
9. 4
10. 4
11. 4
12. 2
13. 2
14. 2
15. 2

Задача 8

1. 3
2. 1
3. 3
4. 1
5. 3
6. 3
7. 1
8. 3
9. 4
10. 2
11. 1
12. 1
13. 1
14. 1
15. 4

Задача 9

1. 3
2. 2
3. 2
4. 2
5. 4
6. 2
7. 1
8. 3
9. 4
10. 3
11. 2
12. 3

Задача 10

1. 2
2. 2
3. 2
4. 1
5. 3
6. 2
7. 2
8. 3
9. 3
10. 1

Задача 11

1. 4
2. 4
3. 4
4. 3
5. 3
6. 4
7. 3
8. 3
9. 3
10. 4
11. 3

Задача 12

1. 2
2. 2
3. 3
4. 4
5. 3
6. 3
7. 3
8. 3
9. 1
10. 1
11. 4
12. 2

Задача 13

1. 4
2. 2
3. 3
4. 2
5. 3
6. 2
7. 2
8. 1
9. 1
10. 1

Задача 14

1. 3
2. 2
3. 3
4. 1
5. 3
6. 2
7. 4
8. 1
9. 4
10. 1