Содержание

Задача 1 3

Задача 2 15

Задача 3 33

Задача 4 49

Задача 5 65

Задача 6 83

Задача 7 89

Ответы 98

Задача 1

1. Установите соответствие между графиками функций и формулами, которые их задают.

ГРАФИКИ

А)

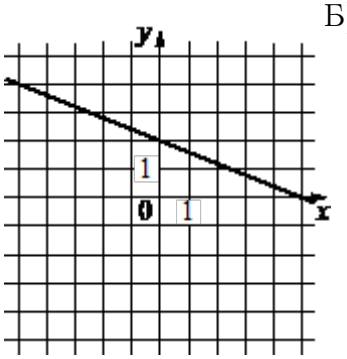

Б)

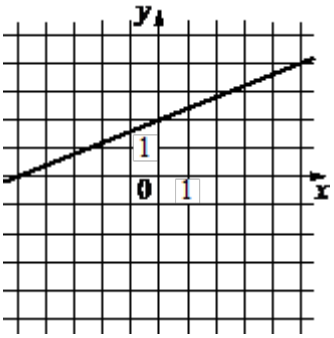

В)

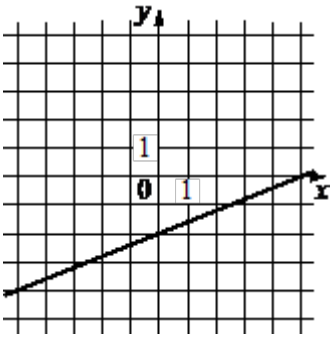

ФОРМУЛЫ

1) $y = \frac{2}{5}x + 2$ 2) $y = \frac{2}{5}x - 2$ 3) $y = -\frac{2}{5}x + 2$

В таблице под каждой буквой укажите соответствующий номер.

А	Б	В

2. Установите соответствие между графиками функций и формулами, которые их задают.

ГРАФИКИ

А)

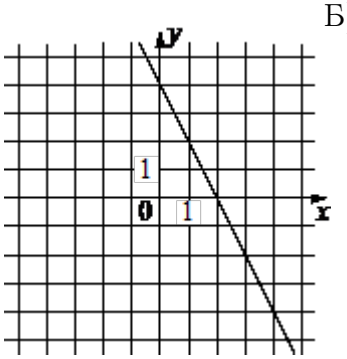

Б)

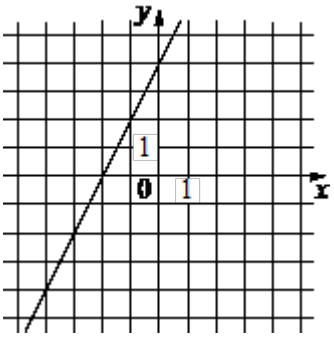

В)

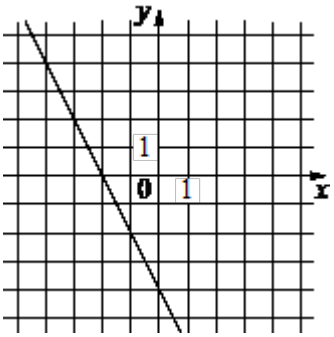

ФОРМУЛЫ

1) $y = 2x + 4$ 2) $y = -2x - 4$ 3) $y = -2x + 4$

В таблице под каждой буквой укажите соответствующий номер.

А	Б	В

3. Установите соответствие между функциями и их графиками.

ФУНКЦИИ

А) $y = 3x$ Б) $y = \frac{1}{3}x$ В) $y = -\frac{1}{3}x$

ГРАФИКИ

1) 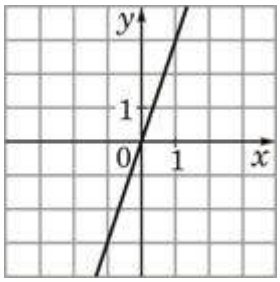

2) 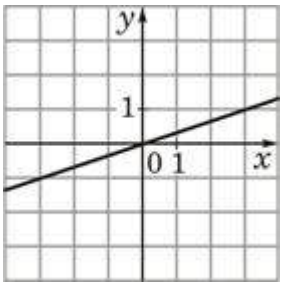

3) 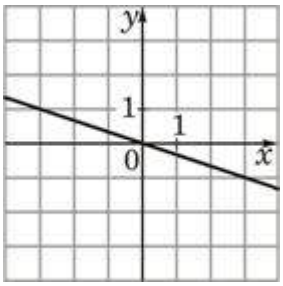

В таблице под каждой буквой укажите соответствующий номер.

А	Б	В

4. Установите соответствие между функциями и их графиками.

ФУНКЦИИ

А) $y = -3x$ Б) $y = 3x$ В) $y = -\frac{1}{3}x$

ГРАФИКИ

1) 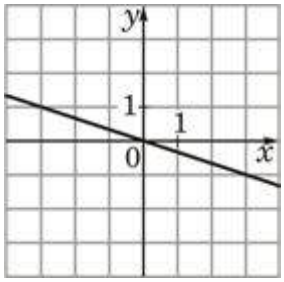

2) 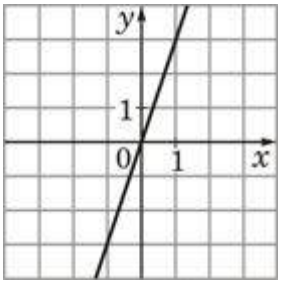

3) 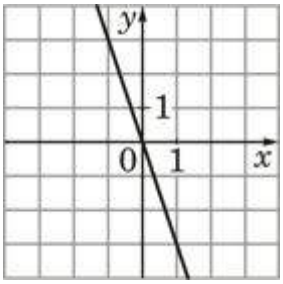

В таблице под каждой буквой укажите соответствующий номер.

А	Б	В

5. Установите соответствие между функциями и их графиками.

ФУНКЦИИ

А) $y = -3x$ Б) $y = -\frac{1}{3}x$ В) $y = \frac{1}{3}x$

ГРАФИКИ

1) 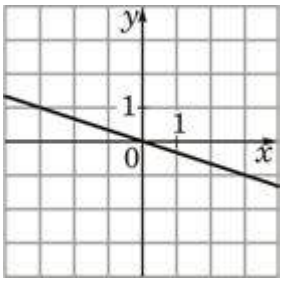

2) 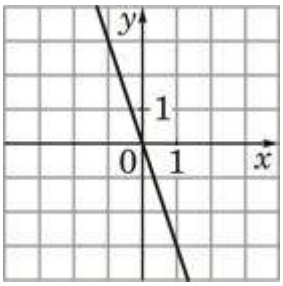

3) 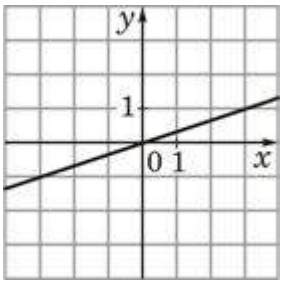

В таблице под каждой буквой укажите соответствующий номер.

А	Б	В

6. Установите соответствие между функциями и их графиками.

ФУНКЦИИ

А) $y = 3x$ Б) $y = -3x$ В) $y = \frac{1}{3}x$

ГРАФИКИ

1) 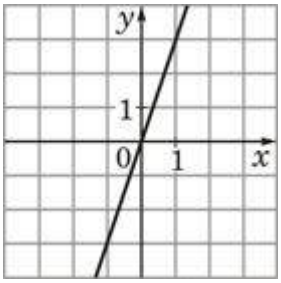

2) 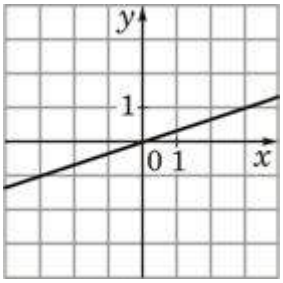

3) 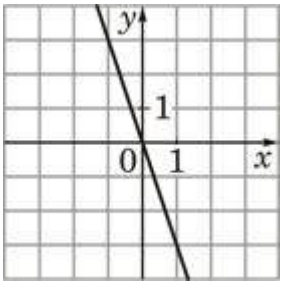

В таблице под каждой буквой укажите соответствующий номер.

А	Б	В

7. Установите соответствие между функциями и их графиками.

ФУНКЦИИ

А) $y = \frac{1}{2}x - 2$ Б) $y = -\frac{1}{2}x - 2$ В) $y = -\frac{1}{2}x + 2$

ГРАФИКИ

1) 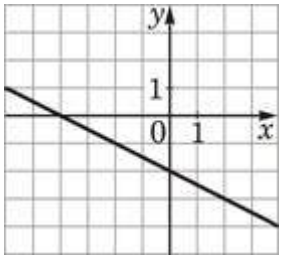

2) 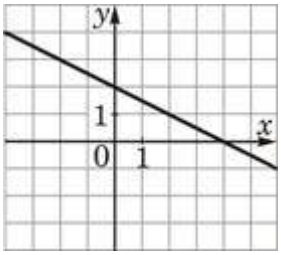

3) 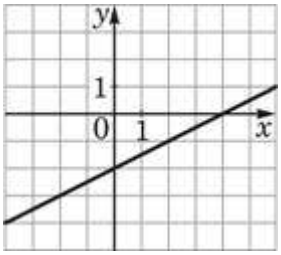

В таблице под каждой буквой укажите соответствующий номер.

А	Б	В

8. Установите соответствие между функциями и их графиками.

ФУНКЦИИ

А) $y = -2x - 4$ Б) $y = -2x + 4$ В) $y = 2x - 4$

ГРАФИКИ

1) 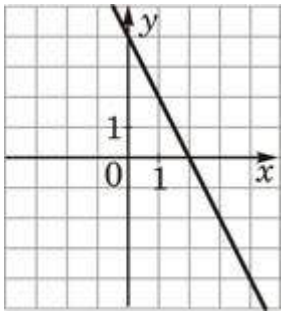

2) 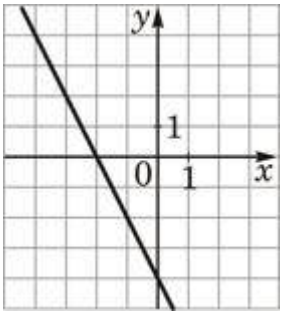

3) 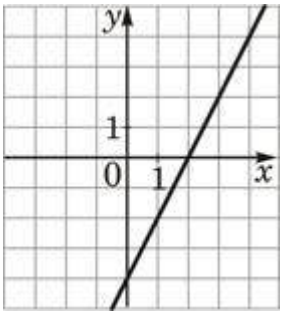

В таблице под каждой буквой укажите соответствующий номер.

А	Б	В

9. Установите соответствие между функциями и их графиками.

ФУНКЦИИ

А) $y = 2x + 6$ Б) $y = -2x - 6$ В) $y = -2x + 6$

ГРАФИКИ

1)
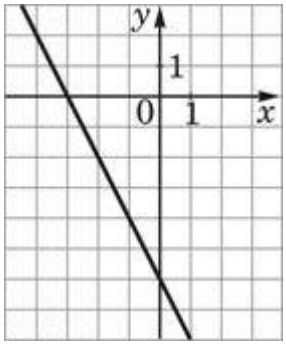

2)
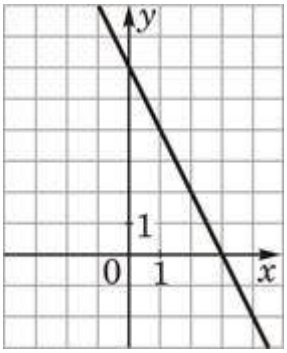

3)
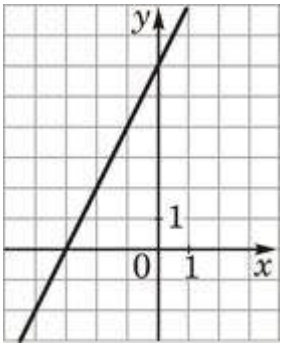

В таблице под каждой буквой укажите соответствующий номер.

А	Б	В

10. Установите соответствие между функциями и их графиками.

ФУНКЦИИ

А) $y = -2x + 4$ Б) $y = 2x - 4$ В) $y = 2x + 4$

ГРАФИКИ

1)
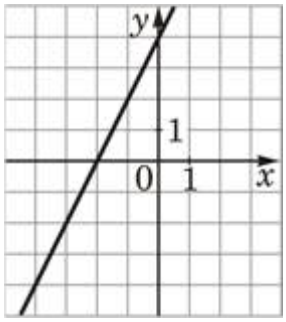

2)
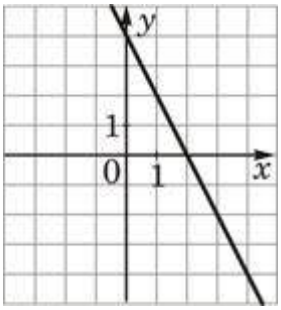

3)
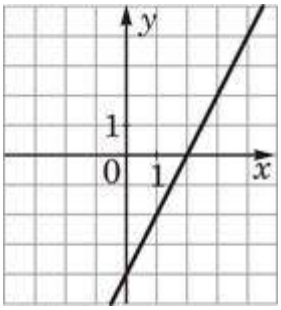

В таблице под каждой буквой укажите соответствующий номер.

А	Б	В

11. Установите соответствие между функциями и их графиками.

ФУНКЦИИ

А) $y = \frac{1}{2}x + 3$ Б) $y = -\frac{1}{2}x + 3$ В) $y = \frac{1}{2}x - 3$

ГРАФИКИ

1) 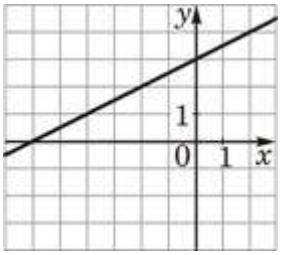

2) 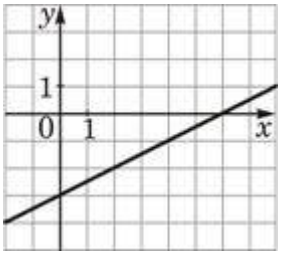

3) 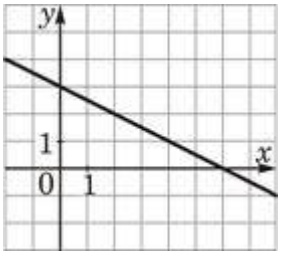

В таблице под каждой буквой укажите соответствующий номер.

А	Б	В

12. Установите соответствие между функциями и их графиками.

ФУНКЦИИ

А) $y = \frac{1}{2}x - 3$ Б) $y = -\frac{1}{2}x - 3$ В) $y = -\frac{1}{2}x + 3$

ГРАФИКИ

1) 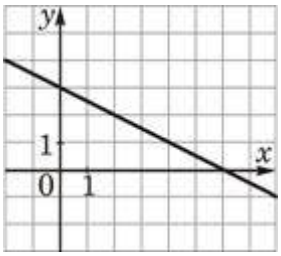

2) 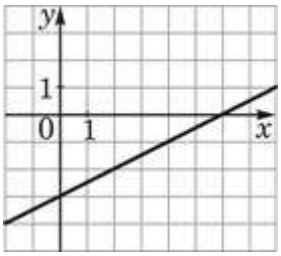

3) 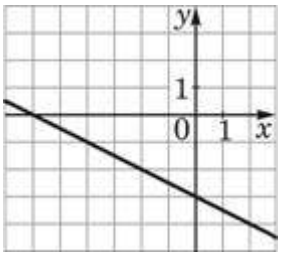

В таблице под каждой буквой укажите соответствующий номер.

А	Б	В

13. Установите соответствие между функциями и их графиками.

ФУНКЦИИ

А) $y = -\frac{1}{2}x - 2$ Б) $y = \frac{1}{2}x + 2$ В) $y = \frac{1}{2}x - 2$

ГРАФИКИ

1) 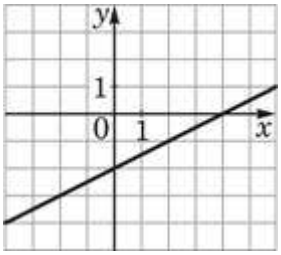

2) 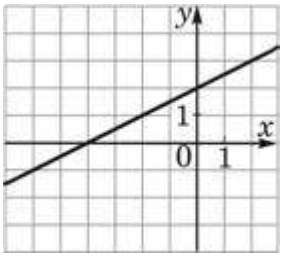

3) 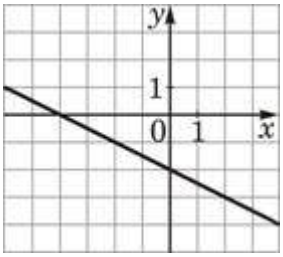

В таблице под каждой буквой укажите соответствующий номер.

А	Б	В

14. Установите соответствие между функциями и их графиками.

ФУНКЦИИ

А) $y = \frac{1}{5}x - 2$ Б) $y = -\frac{1}{5}x + 2$ В) $y = -\frac{1}{5}x - 2$

ГРАФИКИ

1) 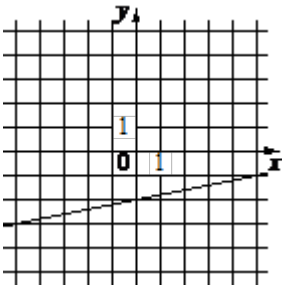

2) 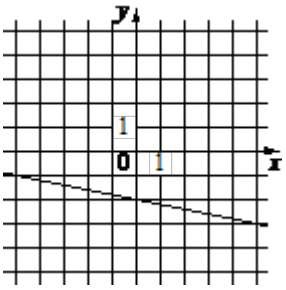

3) 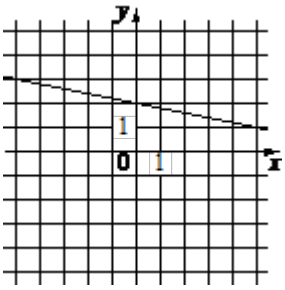

В таблице под каждой буквой укажите соответствующий номер.

А	Б	В

15. Установите соответствие между функциями и их графиками.

ФУНКЦИИ

А) $y = -\frac{2}{3}x - 5$ Б) $y = \frac{2}{3}x + 5$ В) $y = \frac{2}{3}x - 5$

ГРАФИКИ

1)
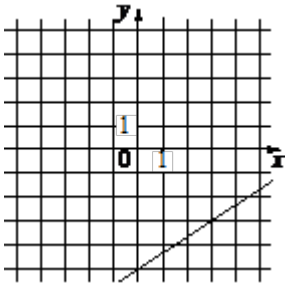

2)
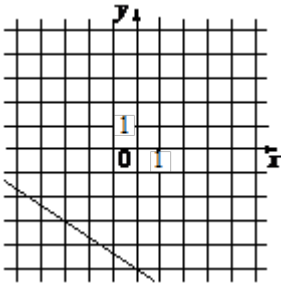

3)
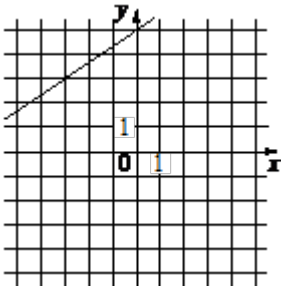

В таблице под каждой буквой укажите соответствующий номер.

А	Б	В

16. Установите соответствие между графиками функций и формулами, которые их задают.

ГРАФИКИ

А)
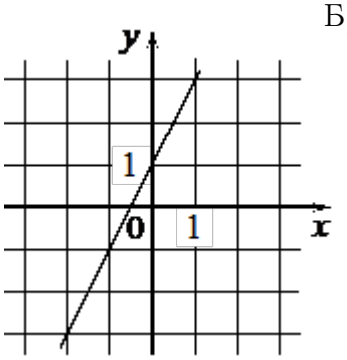

Б)
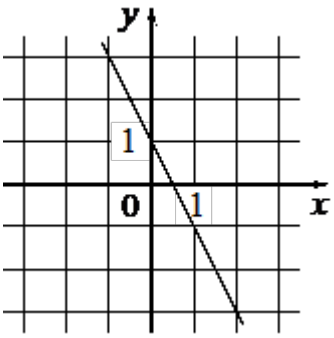

В)
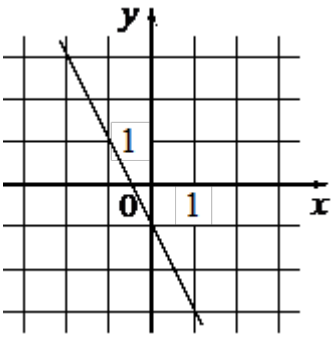

ФОРМУЛЫ

1) $y = -2x - 1$ 2) $y = -2x + 1$ 3) $y = 2x + 1$

В таблице под каждой буквой укажите соответствующий номер.

А	Б	В

17. Установите соответствие между графиками функций и формулами, которые их задают.

ГРАФИКИ

А)

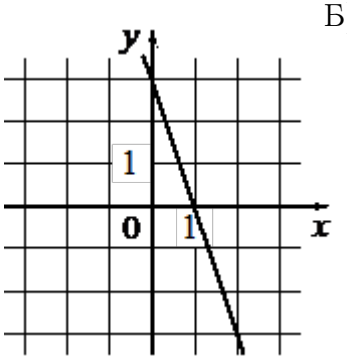

Б)

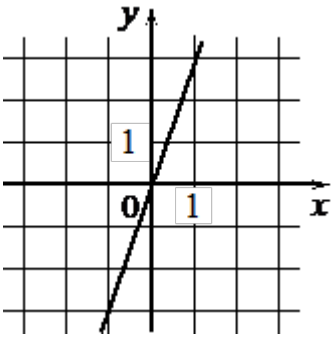

В)

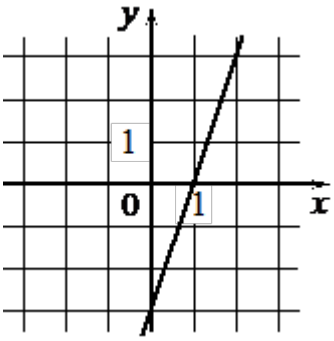

ФОРМУЛЫ

1) $y = -3x + 3$ 2) $y = 3x$ 3) $y = 3x - 3$

В таблице под каждой буквой укажите соответствующий номер.

А	Б	В

18. Установите соответствие между графиками функций и формулами, которые их задают.

ГРАФИКИ

А)

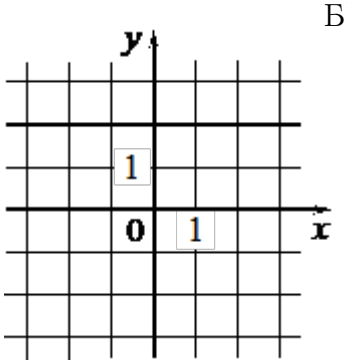

Б)

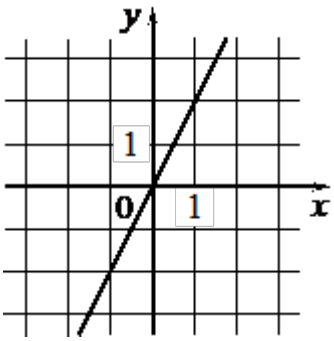

В)

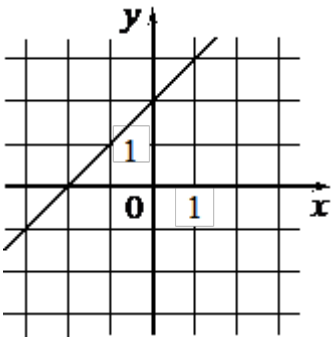

ФОРМУЛЫ

1) $y = 2x$ 2) $y = x + 2$ 3) $y = 2$

В таблице под каждой буквой укажите соответствующий номер.

А	Б	В

19. Установите соответствие между графиками функций и формулами, которые их задают.

ГРАФИКИ

А)

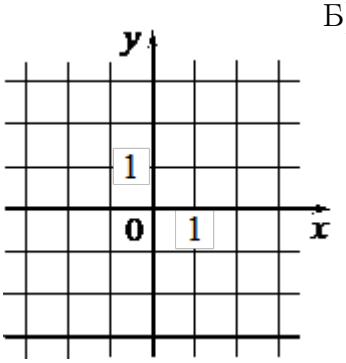

Б)

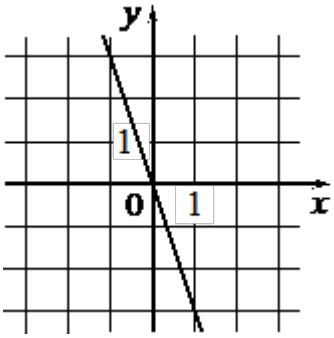

В)

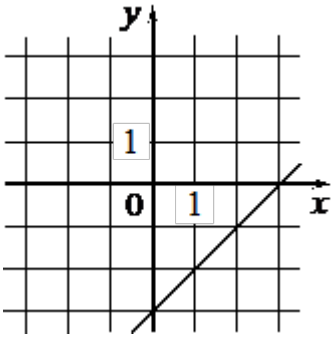

ФОРМУЛЫ

1) $y = -3$ 2) $y = x - 3$ 3) $y = -3x$

В таблице под каждой буквой укажите соответствующий номер.

А	Б	В

20. Установите соответствие между графиками функций и формулами, которые их задают.

ГРАФИКИ

А)

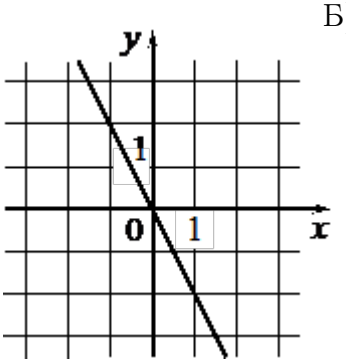

Б)

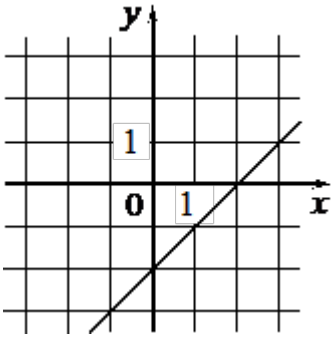

В)

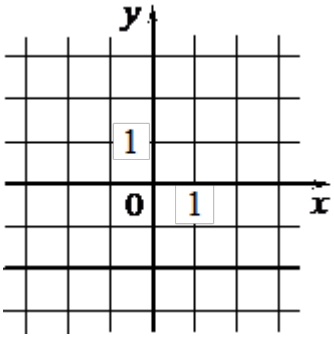

ФОРМУЛЫ

1) $y = -2$ 2) $y = x - 2$ 3) $y = -2x$

В таблице под каждой буквой укажите соответствующий номер.

А	Б	В

21. Установите соответствие между графиками функций и формулами, которые их задают.

ГРАФИКИ

А)

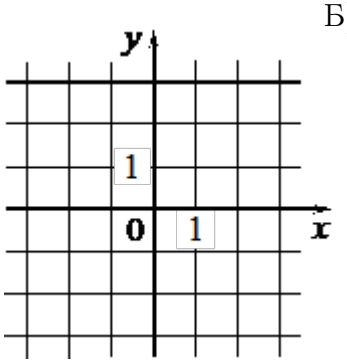

Б)

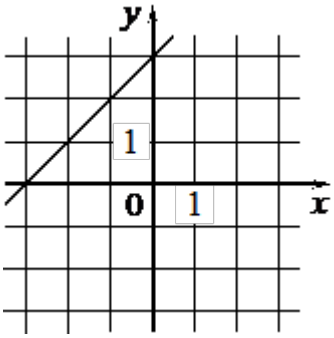

В)

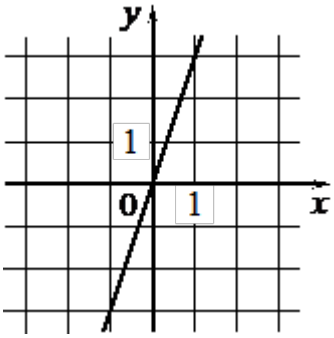

ФОРМУЛЫ

1) $y = x + 3$ 2) $y = 3$ 3) $y = 3x$

В таблице под каждой буквой укажите соответствующий номер.

А	Б	В

22. Установите соответствие между графиками функций и формулами, которые их задают.

ГРАФИКИ

А)

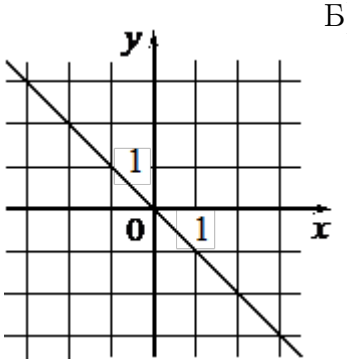

Б)

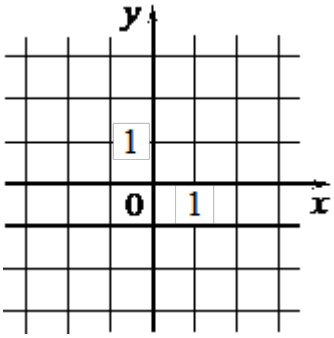

В)

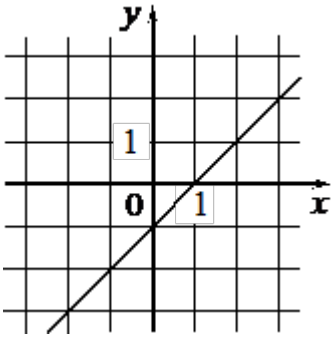

ФОРМУЛЫ

1) $y = -x$ 2) $y = -1$ 3) $y = x - 1$

В таблице под каждой буквой укажите соответствующий номер.

А	Б	В

23. Установите соответствие между графиками функций и формулами, которые их задают.

ГРАФИКИ

А)

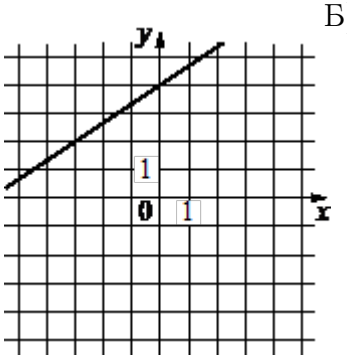

Б)

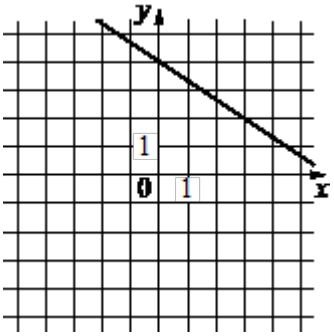

В)

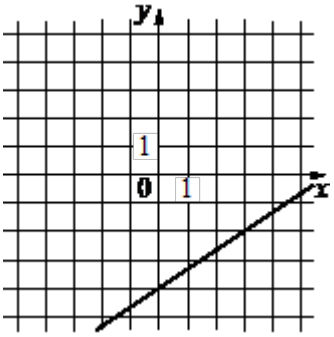

ФОРМУЛЫ

1) $y = -\frac{2}{3}x + 4$ 2) $y = \frac{2}{3}x - 4$ 3) $y = \frac{2}{3}x + 4$

В таблице под каждой буквой укажите соответствующий номер.

А	Б	В

Задача 2

1. На рисунках изображены графики функций вида $y = kx + b$. Установите соответствие между знаками коэффициентов k и b и графиками функций.

КОЭФФИЦИЕНТЫ

А) $k < 0, b < 0$ Б) $k < 0, b > 0$ В) $k > 0, b < 0$

ГРАФИКИ

1)

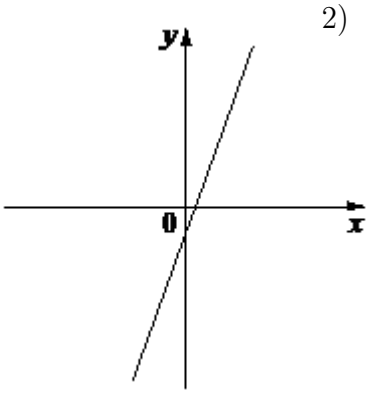

2)

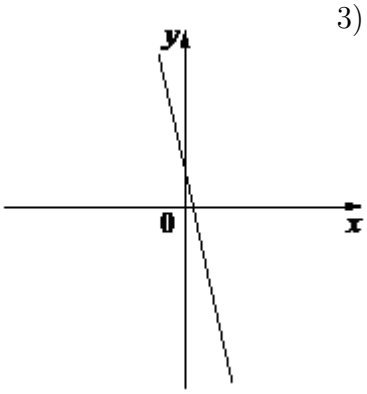

3)

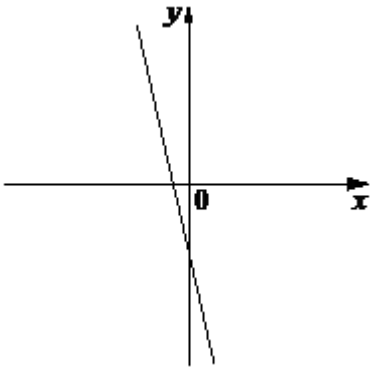

В таблице под каждой буквой укажите соответствующий номер.

А	Б	В

2. На рисунках изображены графики функций вида $y = kx + b$. Установите соответствие между знаками коэффициентов k и b и графиками функций.

КОЭФФИЦИЕНТЫ

А) $k > 0, b > 0$ Б) $k < 0, b > 0$ В) $k > 0, b < 0$

ГРАФИКИ

1) 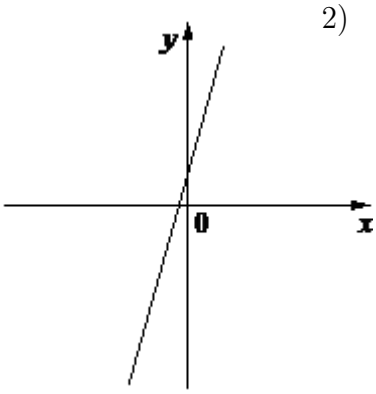

2) 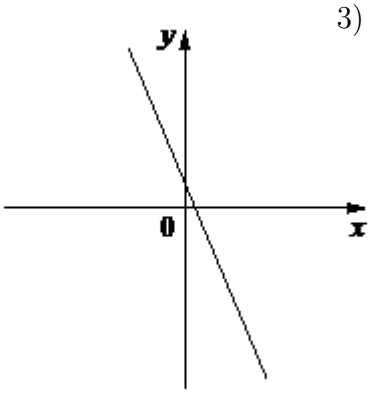

3) 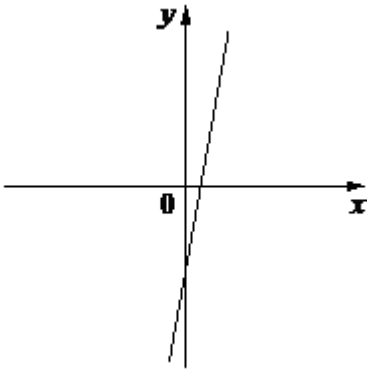

В таблице под каждой буквой укажите соответствующий номер.

А	Б	В

3. На рисунках изображены графики функций вида $y = kx + b$. Установите соответствие между знаками коэффициентов k и b и графиками функций.

КОЭФФИЦИЕНТЫ

А) $k < 0, b < 0$ Б) $k < 0, b > 0$ В) $k > 0, b > 0$

ГРАФИКИ

1) 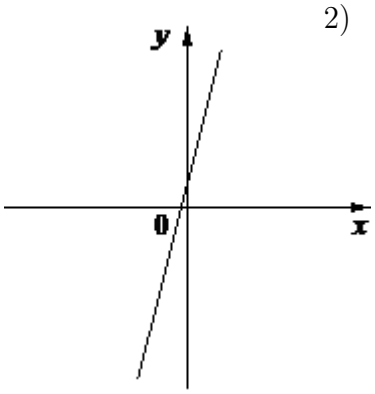

2) 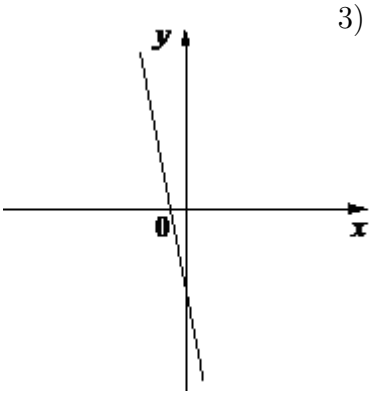

3) 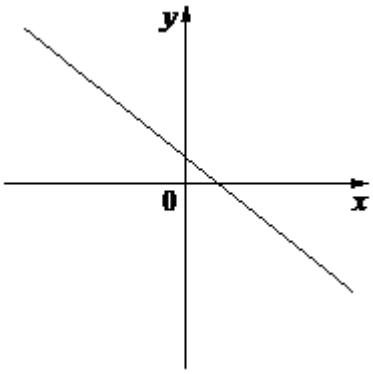

В таблице под каждой буквой укажите соответствующий номер.

А	Б	В

4. На рисунках изображены графики функций вида $y = kx + b$. Установите соответствие между знаками коэффициентов k и b и графиками функций.

КОЭФФИЦИЕНТЫ

А) $k > 0, b > 0$ Б) $k < 0, b > 0$ В) $k < 0, b < 0$

ГРАФИКИ

1)

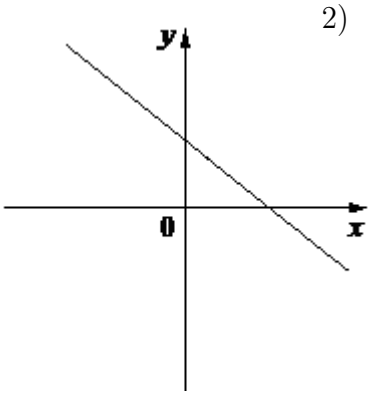

2)

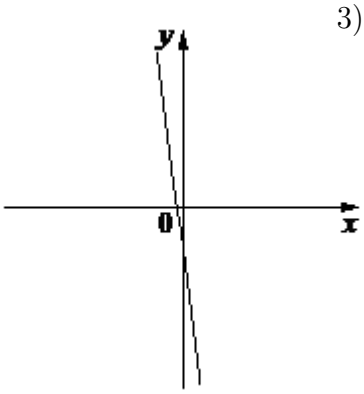

3)

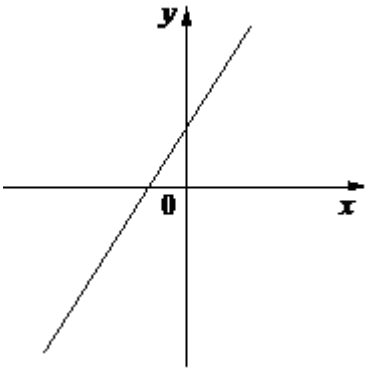

В таблице под каждой буквой укажите соответствующий номер.

А	Б	В

5. На рисунках изображены графики функций вида $y = kx + b$. Установите соответствие между знаками коэффициентов k и b и графиками функций.

КОЭФФИЦИЕНТЫ

А) $k < 0, b < 0$ Б) $k < 0, b > 0$ В) $k > 0, b < 0$

ГРАФИКИ

1) 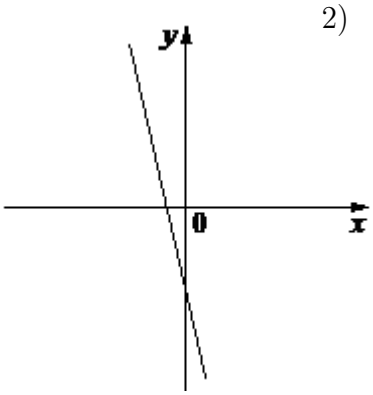

2) 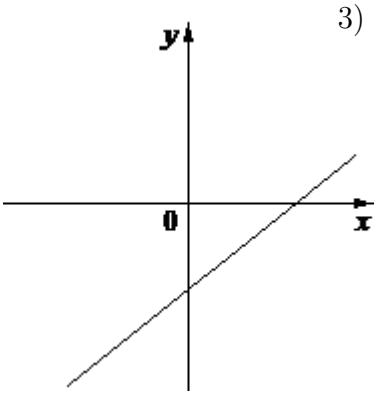

3) 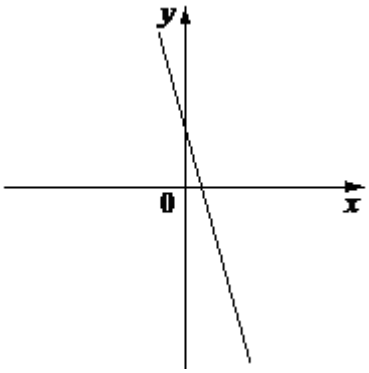

В таблице под каждой буквой укажите соответствующий номер.

А	Б	В

6. На рисунках изображены графики функций вида $y = kx + b$. Установите соответствие между знаками коэффициентов k и b и графиками функций.

КОЭФФИЦИЕНТЫ

А) $k < 0, b < 0$ Б) $k < 0, b > 0$ В) $k > 0, b < 0$

ГРАФИКИ

1) 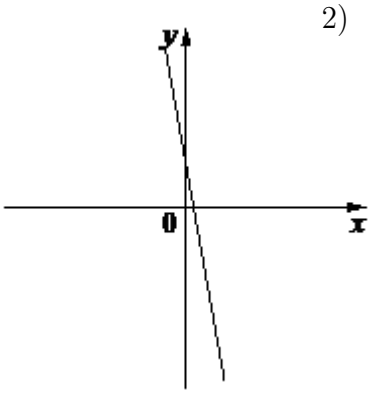

2) 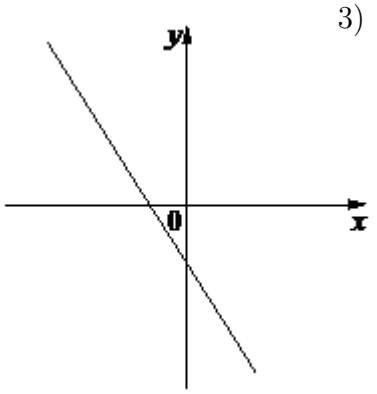

3) 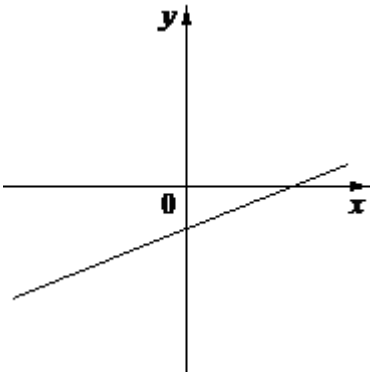

В таблице под каждой буквой укажите соответствующий номер.

А	Б	В

7. На рисунках изображены графики функций вида $y = kx + b$. Установите соответствие между знаками коэффициентов k и b и графиками функций.

КОЭФФИЦИЕНТЫ

А) $k < 0, b < 0$ Б) $k > 0, b > 0$ В) $k < 0, b > 0$

ГРАФИКИ

1)

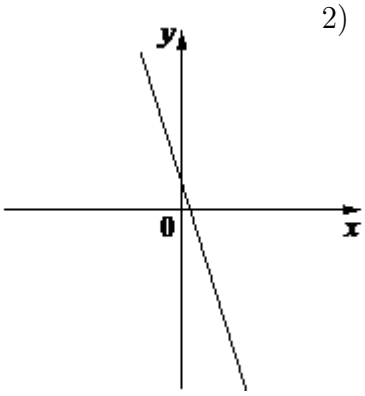

2)

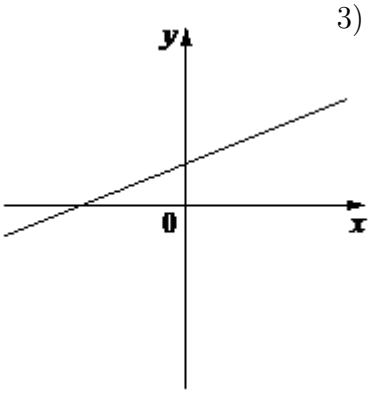

3)

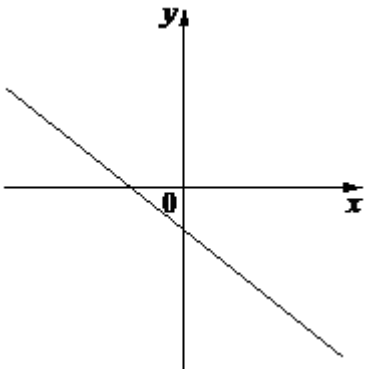

В таблице под каждой буквой укажите соответствующий номер.

А	Б	В

8. На рисунках изображены графики функций вида $y = kx + b$. Установите соответствие между знаками коэффициентов k и b и графиками функций.

КОЭФФИЦИЕНТЫ

А) $k < 0, b > 0$ Б) $k > 0, b < 0$ В) $k < 0, b < 0$

ГРАФИКИ

1) 2) 3)

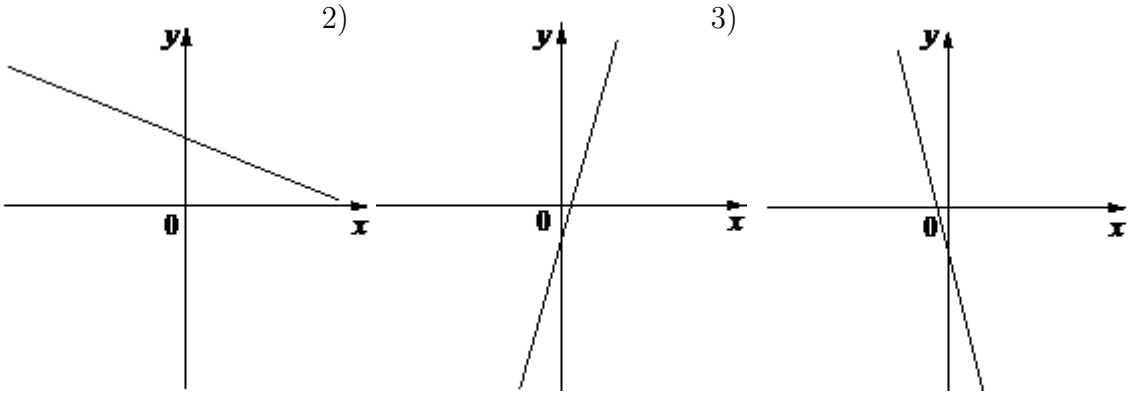

В таблице под каждой буквой укажите соответствующий номер.

А	Б	В

9. На рисунках изображены графики функций вида $y = kx + b$. Установите соответствие между знаками коэффициентов k и b и графиками функций.

КОЭФФИЦИЕНТЫ

А) $k < 0, b < 0$ Б) $k > 0, b < 0$ В) $k > 0, b > 0$

ГРАФИКИ

1) 2) 3)

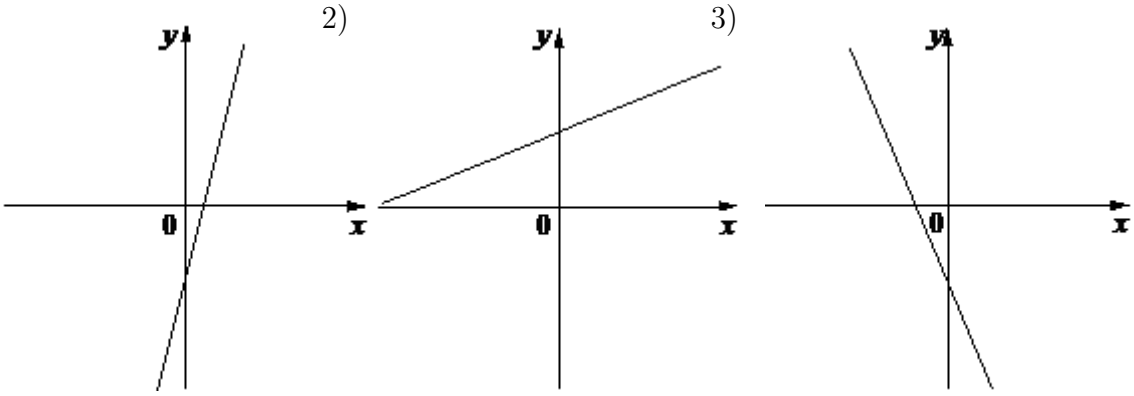

В таблице под каждой буквой укажите соответствующий номер.

А	Б	В

10. На рисунках изображены графики функций вида $y = kx + b$. Установите соответствие между знаками коэффициентов k и b и графиками функций.

КОЭФФИЦИЕНТЫ

А) $k > 0, b > 0$ Б) $k > 0, b < 0$ В) $k < 0, b < 0$

ГРАФИКИ

1)

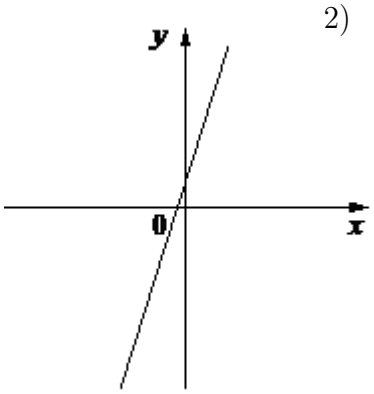

2)

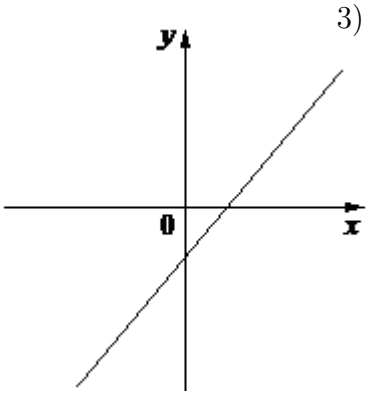

3)

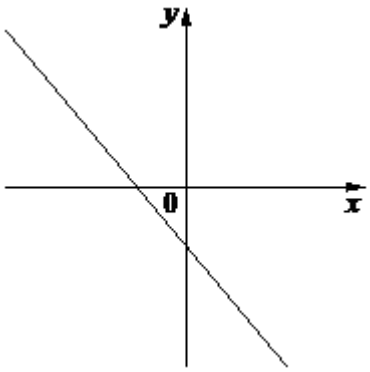

В таблице под каждой буквой укажите соответствующий номер.

А	Б	В

11. На рисунках изображены графики функций вида $y = kx + b$. Установите соответствие между знаками коэффициентов k и b и графиками функций.

КОЭФФИЦИЕНТЫ

А) $k < 0, b < 0$ Б) $k < 0, b > 0$ В) $k > 0, b > 0$

ГРАФИКИ

1) 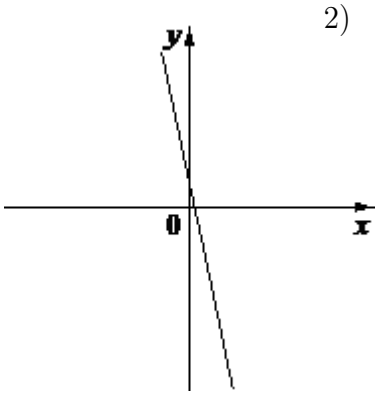

2) 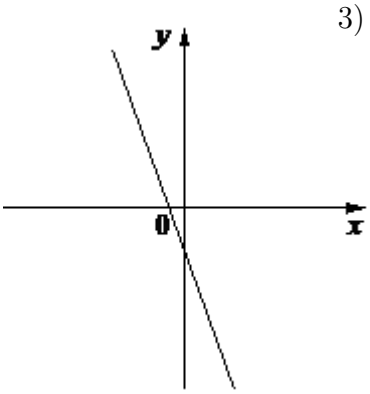

3) 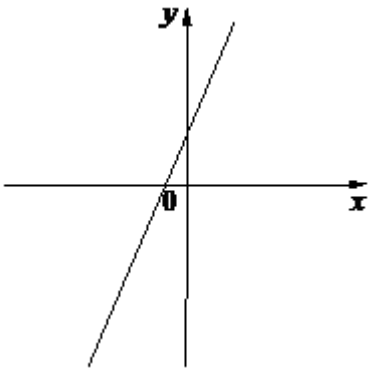

В таблице под каждой буквой укажите соответствующий номер.

А	Б	В

12. На рисунках изображены графики функций вида $y = kx + b$. Установите соответствие между знаками коэффициентов k и b и графиками функций.

КОЭФФИЦИЕНТЫ

А) $k > 0, b < 0$ Б) $k > 0, b > 0$ В) $k < 0, b < 0$

ГРАФИКИ

1) 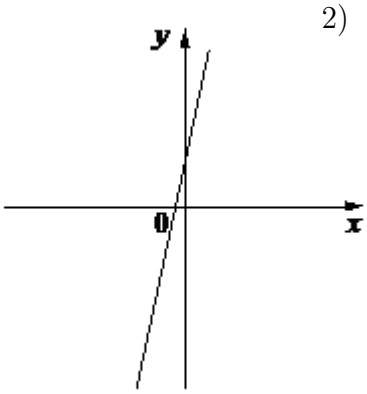

2) 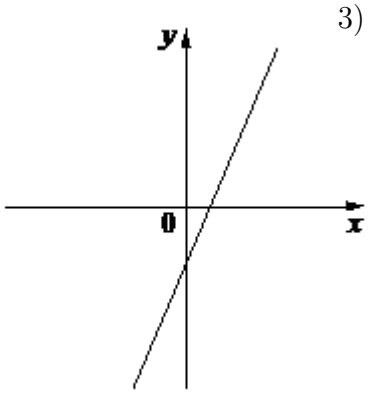

3) 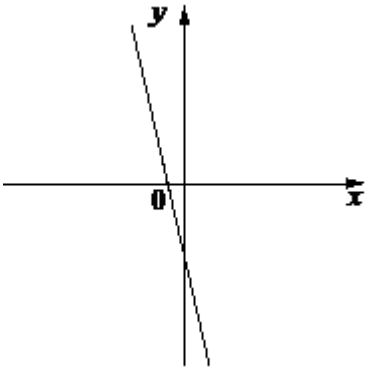

В таблице под каждой буквой укажите соответствующий номер.

А	Б	В

13. На рисунках изображены графики функций вида $y = kx + b$. Установите соответствие между знаками коэффициентов k и b и графиками функций.

КОЭФФИЦИЕНТЫ

А) $k < 0, b < 0$ Б) $k < 0, b > 0$ В) $k > 0, b < 0$

ГРАФИКИ

1)

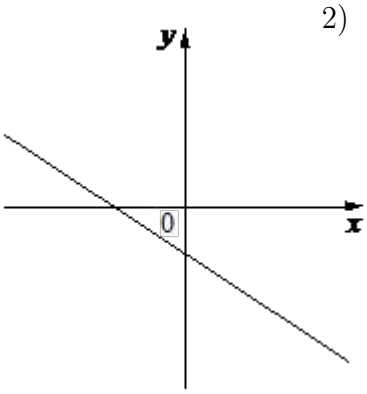

2)

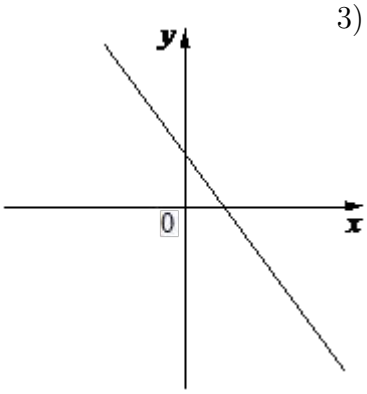

3)

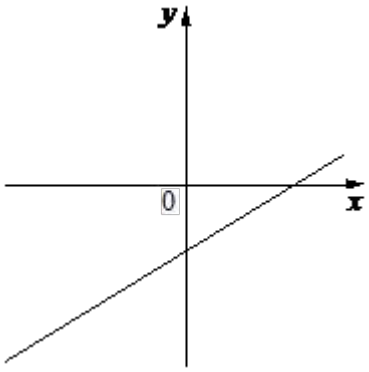

В таблице под каждой буквой укажите соответствующий номер.

А	Б	В

14. На рисунках изображены графики функций вида $y = kx + b$. Установите соответствие между графиками и знаками коэффициентов k и b.

ГРАФИКИ

А)

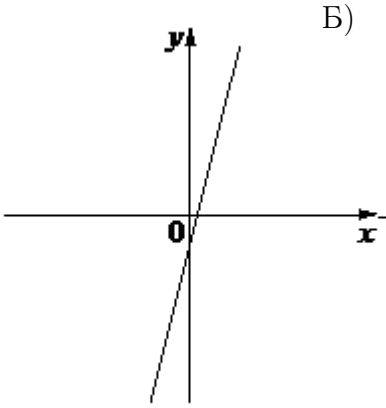

Б)

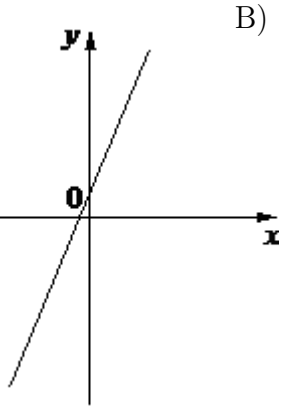

В)

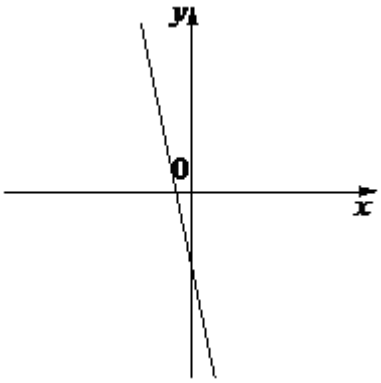

КОЭФФИЦИЕНТЫ

1) $k > 0, b < 0$ 2) $k < 0, b < 0$ 3) $k > 0, b > 0$

В таблице под каждой буквой укажите соответствующий номер.

А	Б	В

15. На рисунках изображены графики функций вида $y = kx + b$. Установите соответствие между графиками и знаками коэффициентов k и b.

ГРАФИКИ

А)

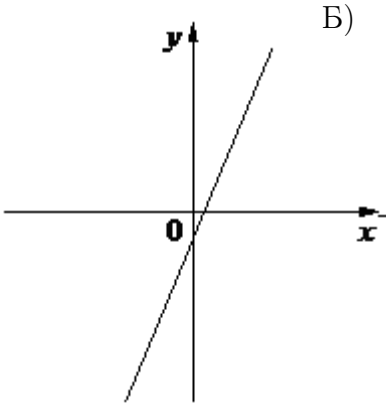

Б)

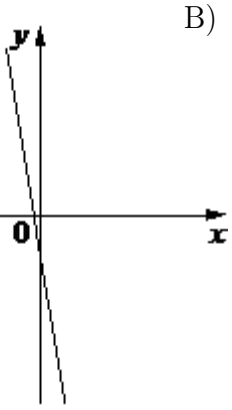

В)

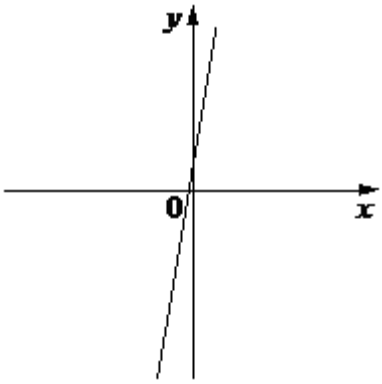

КОЭФФИЦИЕНТЫ

1) $k < 0, b < 0$ 2) $k > 0, b > 0$ 3) $k > 0, b < 0$

В таблице под каждой буквой укажите соответствующий номер.

А	Б	В

16. На рисунках изображены графики функций вида $y = kx + b$. Установите соответствие между графиками и знаками коэффициентов k и b.

ГРАФИКИ

А)

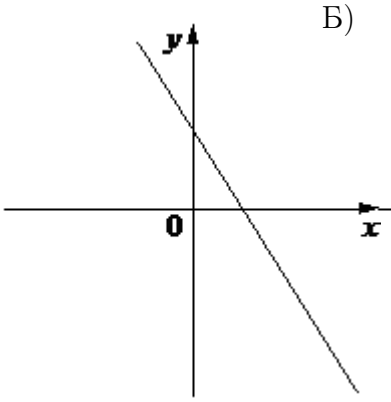

Б)

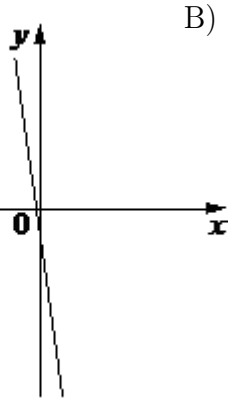

В)

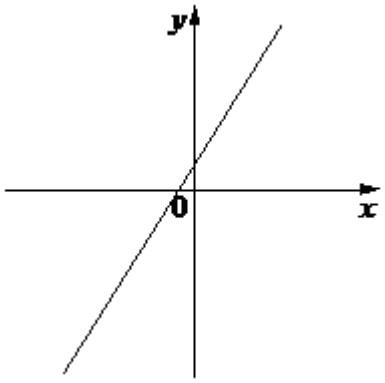

КОЭФФИЦИЕНТЫ

1) $k < 0, b < 0$ 2) $k < 0, b > 0$ 3) $k > 0, b > 0$

В таблице под каждой буквой укажите соответствующий номер.

А	Б	В

17. На рисунках изображены графики функций вида $y = kx + b$. Установите соответствие между графиками и знаками коэффициентов k и b.

ГРАФИКИ

А)

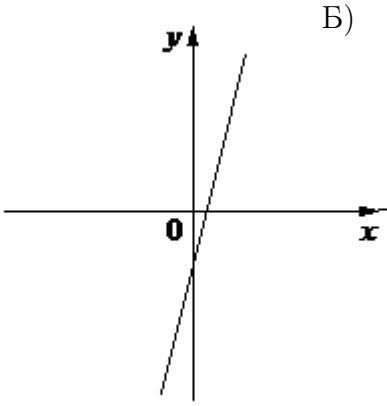

Б)

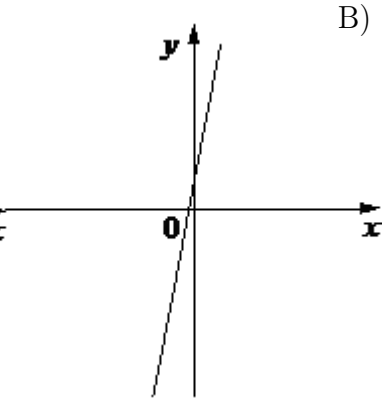

В)

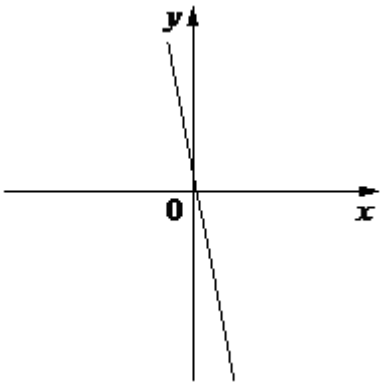

КОЭФФИЦИЕНТЫ

1) $k > 0, b > 0$ 2) $k < 0, b > 0$ 3) $k > 0, b < 0$

В таблице под каждой буквой укажите соответствующий номер.

А	Б	В

18. На рисунках изображены графики функций вида $y = kx + b$. Установите соответствие между графиками и знаками коэффициентов k и b.

ГРАФИКИ

А)

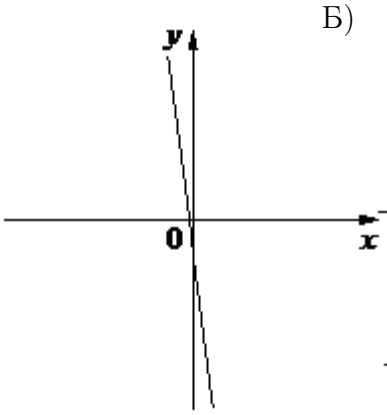

Б)

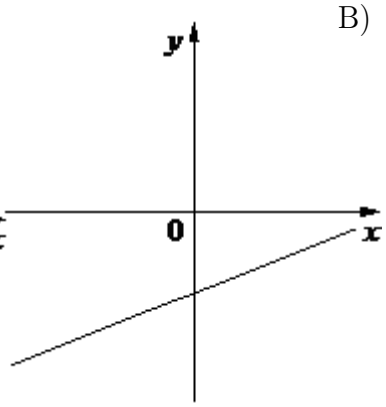

В)

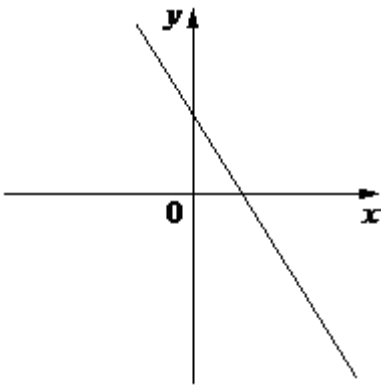

КОЭФФИЦИЕНТЫ

1) $k < 0, b > 0$ 2) $k < 0, b < 0$ 3) $k > 0, b < 0$

В таблице под каждой буквой укажите соответствующий номер.

А	Б	В

19. На рисунках изображены графики функций вида $y = kx + b$. Установите соответствие между графиками и знаками коэффициентов k и b.

ГРАФИКИ

А)

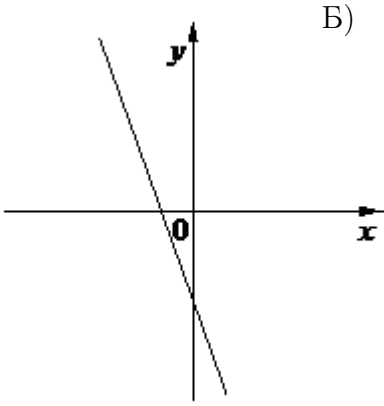

Б)

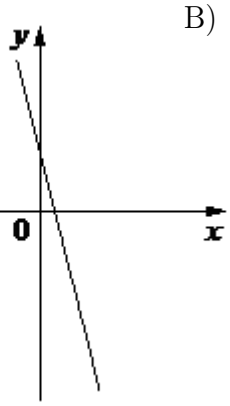

В)

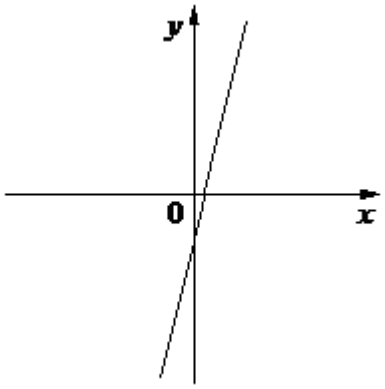

КОЭФФИЦИЕНТЫ

1) $k < 0, b < 0$ 2) $k > 0, b < 0$ 3) $k < 0, b > 0$

В таблице под каждой буквой укажите соответствующий номер.

А	Б	В

20. На рисунках изображены графики функций вида $y = kx + b$. Установите соответствие между графиками и знаками коэффициентов k и b.

ГРАФИКИ

А) Б) В)

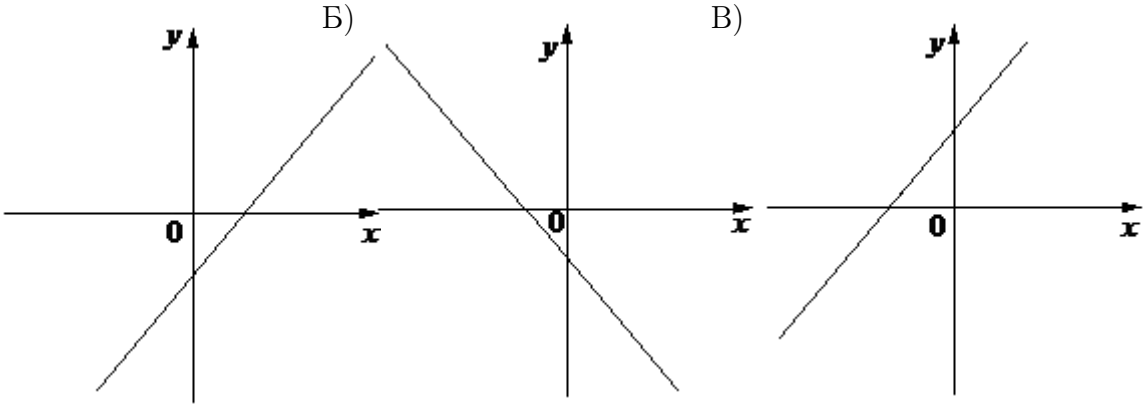

КОЭФФИЦИЕНТЫ

1) $k < 0, b < 0$ 2) $k > 0, b > 0$ 3) $k > 0, b < 0$

В таблице под каждой буквой укажите соответствующий номер.

А	Б	В

21. На рисунках изображены графики функций вида $y = kx + b$. Установите соответствие между графиками и знаками коэффициентов k и b.

ГРАФИКИ

А) Б) В)

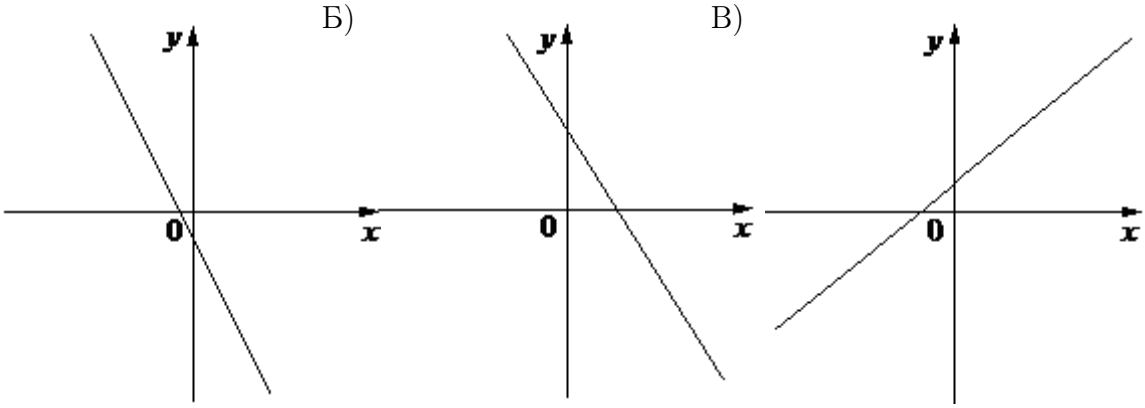

КОЭФФИЦИЕНТЫ

1) $k < 0, b > 0$ 2) $k < 0, b < 0$ 3) $k > 0, b > 0$

В таблице под каждой буквой укажите соответствующий номер.

А	Б	В

22. На рисунках изображены графики функций вида $y = kx + b$. Установите соответствие между графиками и знаками коэффициентов k и b.

ГРАФИКИ

А)

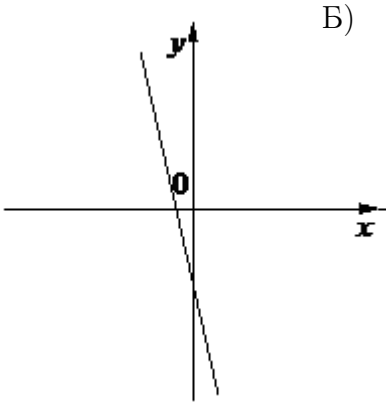

Б)

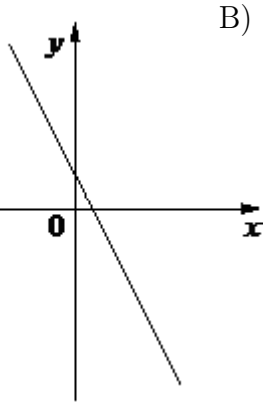

В)

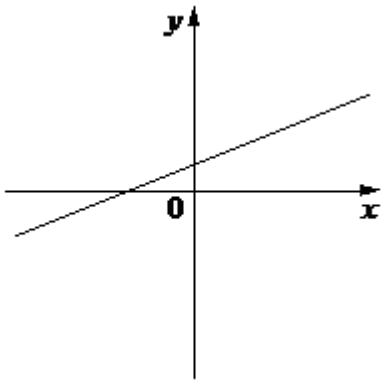

КОЭФФИЦИЕНТЫ

1) $k > 0, b > 0$ 2) $k < 0, b > 0$ 3) $k < 0, b < 0$

В таблице под каждой буквой укажите соответствующий номер.

А	Б	В

23. На рисунках изображены графики функций вида $y = kx + b$. Установите соответствие между графиками и знаками коэффициентов k и b.

ГРАФИКИ

А)

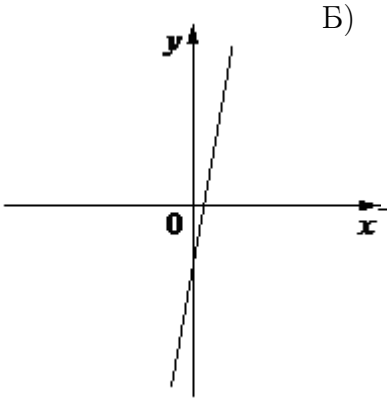

Б)

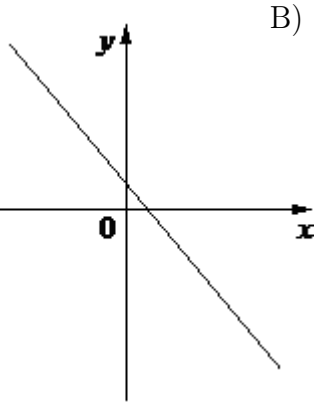

В)

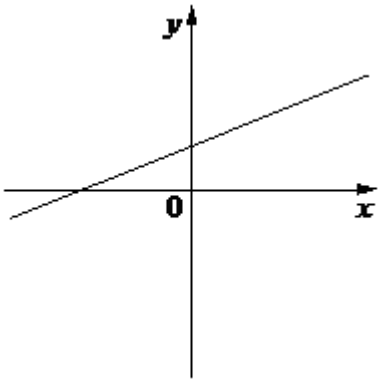

КОЭФФИЦИЕНТЫ

1) $k > 0, b < 0$ 2) $k < 0, b > 0$ 3) $k > 0, b > 0$

В таблице под каждой буквой укажите соответствующий номер.

А	Б	В

24. На рисунках изображены графики функций вида $y = kx + b$. Установите соответствие между графиками и знаками коэффициентов k и b.

ГРАФИКИ

А)

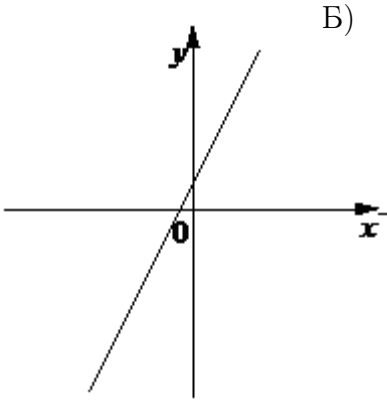

Б)

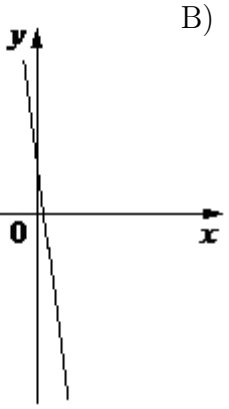

В)

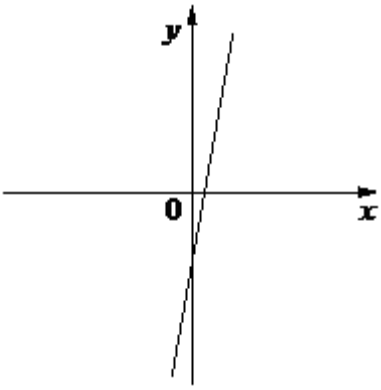

КОЭФФИЦИЕНТЫ

1) $k > 0, b > 0$ 2) $k < 0, b > 0$ 3) $k > 0, b < 0$

В таблице под каждой буквой укажите соответствующий номер.

А	Б	В

25. На рисунках изображены графики функций вида $y = kx + b$. Установите соответствие между графиками и знаками коэффициентов k и b.

ГРАФИКИ

А)

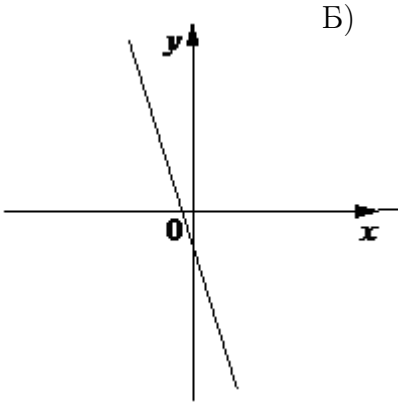

Б)

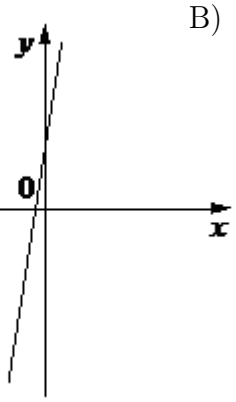

В)

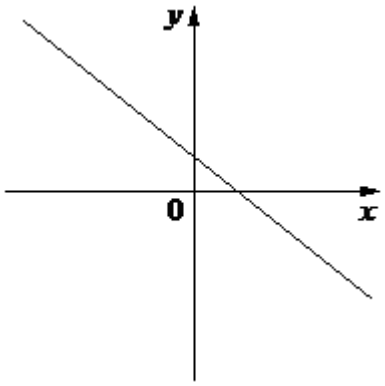

КОЭФФИЦИЕНТЫ

1) $k < 0, b > 0$ 2) $k < 0, b < 0$ 3) $k > 0, b > 0$

В таблице под каждой буквой укажите соответствующий номер.

А	Б	В

26. На рисунках изображены графики функций вида $y = kx + b$. Установите соответствие между графиками и знаками коэффициентов k и b.

ГРАФИКИ

А)

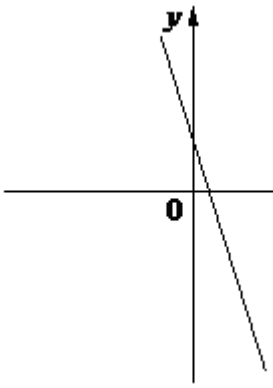

Б)

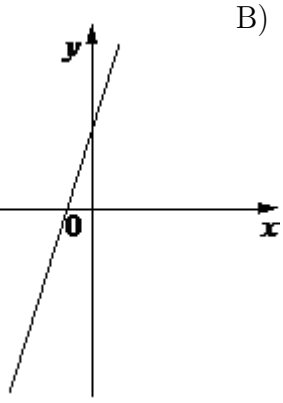

В)

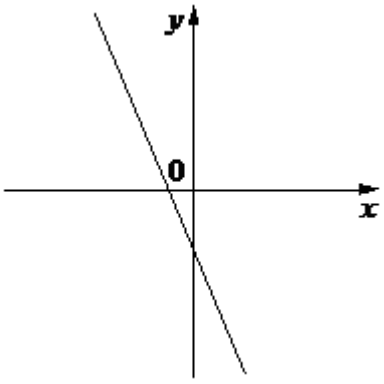

КОЭФФИЦИЕНТЫ

1) $k < 0, b < 0$ 2) $k > 0, b > 0$ 3) $k < 0, b > 0$

В таблице под каждой буквой укажите соответствующий номер.

А	Б	В

Задача 3

1. Установите соответствие между графиками функций и формулами, которые их задают.

ГРАФИКИ

А)

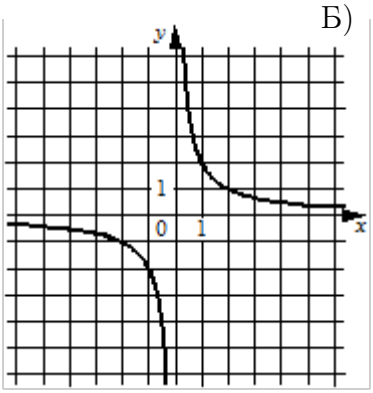

Б)

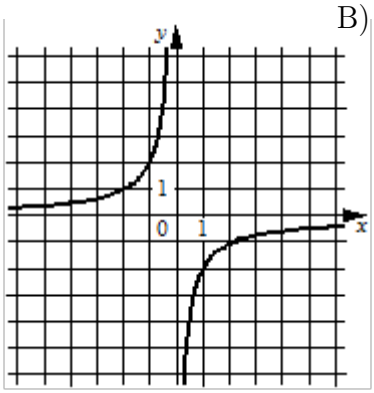

В)

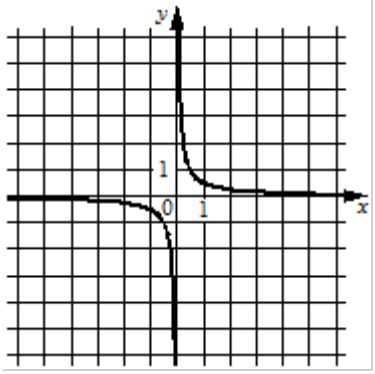

ФОРМУЛЫ

1) $y = \dfrac{2}{x}$ 2) $y = \dfrac{1}{2x}$ 3) $y = -\dfrac{2}{x}$

В таблице под каждой буквой укажите соответствующий номер.

А	Б	В

2. Установите соответствие между графиками функций и формулами, которые их задают.

ГРАФИКИ

А) Б) В)

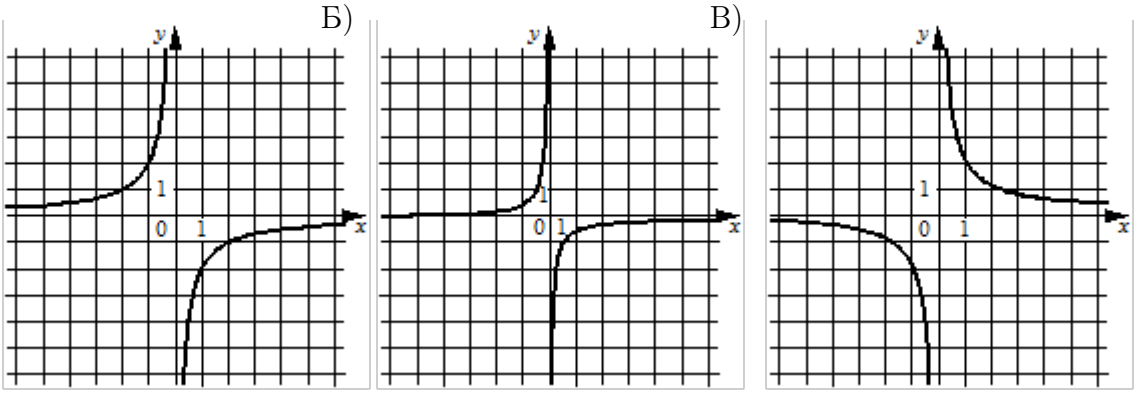

ФОРМУЛЫ

1) $y = -\dfrac{1}{2x}$ 2) $y = -\dfrac{2}{x}$ 3) $y = \dfrac{2}{x}$

В таблице под каждой буквой укажите соответствующий номер.

А	Б	В

3. Установите соответствие между графиками функций и формулами, которые их задают.

ГРАФИКИ

А) Б) В)

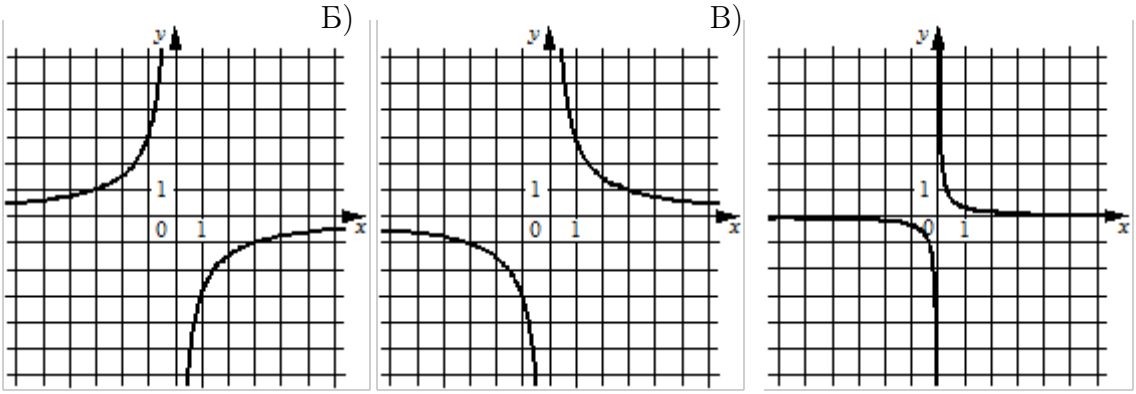

ФОРМУЛЫ

1) $y = -\dfrac{3}{x}$ 2) $y = \dfrac{1}{3x}$ 3) $y = \dfrac{3}{x}$

В таблице под каждой буквой укажите соответствующий номер.

А	Б	В

4. Установите соответствие между графиками функций и формулами, которые их задают.

ГРАФИКИ

А)

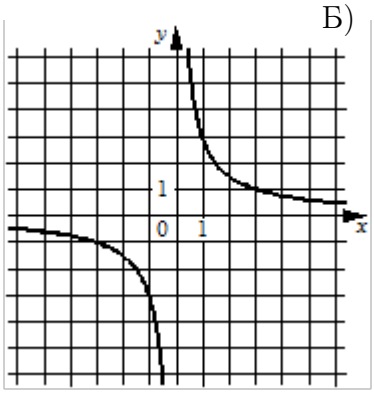

Б)

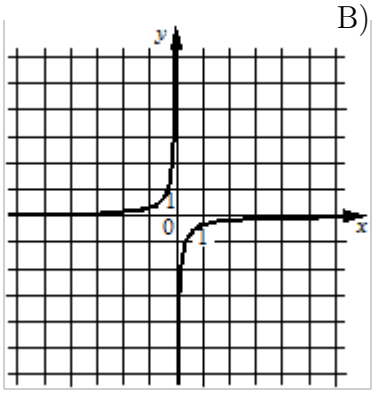

В)

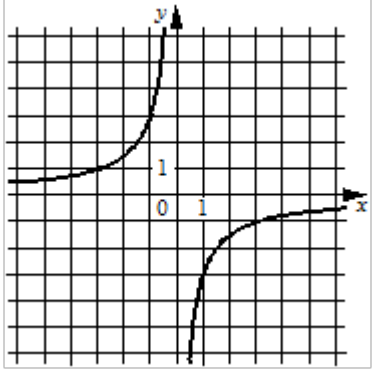

ФОРМУЛЫ

1) $y = -\dfrac{1}{3x}$ 2) $y = \dfrac{3}{x}$ 3) $y = -\dfrac{3}{x}$

В таблице под каждой буквой укажите соответствующий номер.

А	Б	В

5. Установите соответствие между графиками функций и формулами, которые их задают.

ГРАФИКИ

А) Б) В)

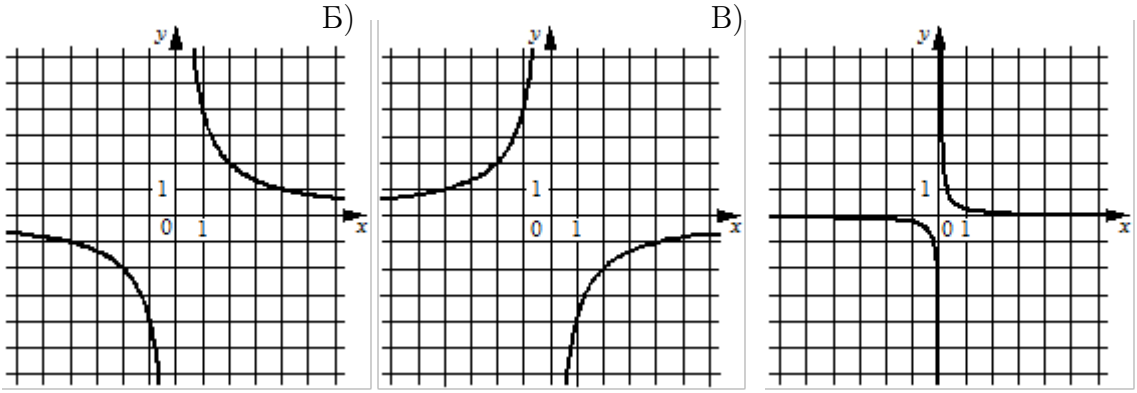

ФОРМУЛЫ

1) $y = -\frac{4}{x}$ 2) $y = \frac{4}{x}$ 3) $y = \frac{1}{4x}$

В таблице под каждой буквой укажите соответствующий номер.

А	Б	В

6. Установите соответствие между графиками функций и формулами, которые их задают.

ГРАФИКИ

А) Б) В)

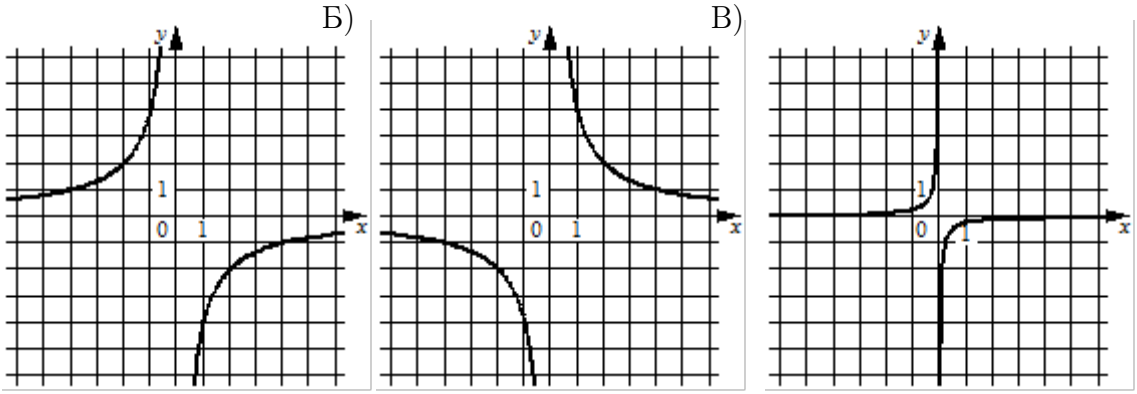

ФОРМУЛЫ

1) $y = -\frac{1}{4x}$ 2) $y = \frac{4}{x}$ 3) $y = -\frac{4}{x}$

В таблице под каждой буквой укажите соответствующий номер.

А	Б	В

7. Установите соответствие между графиками функций и формулами, которые их задают.

ГРАФИКИ

А)

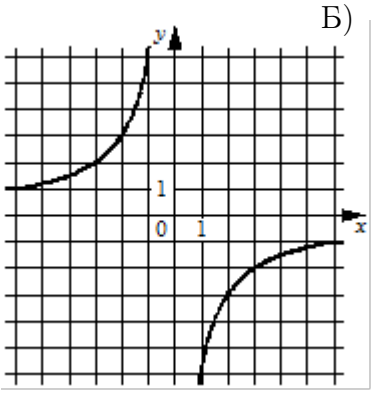

Б)

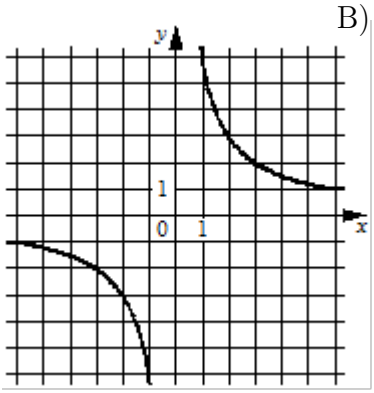

В)

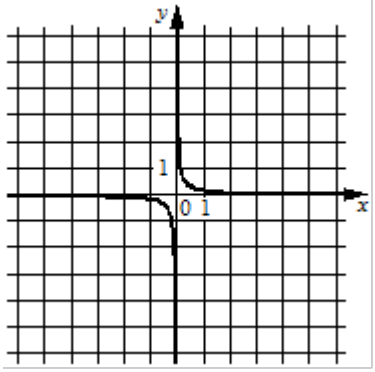

ФОРМУЛЫ

1) $y = \frac{6}{x}$ 2) $y = -\frac{6}{x}$ 3) $y = \frac{1}{6x}$

В таблице под каждой буквой укажите соответствующий номер.

А	Б	В

8. Установите соответствие между графиками функций и формулами, которые их задают.

ГРАФИКИ

А)

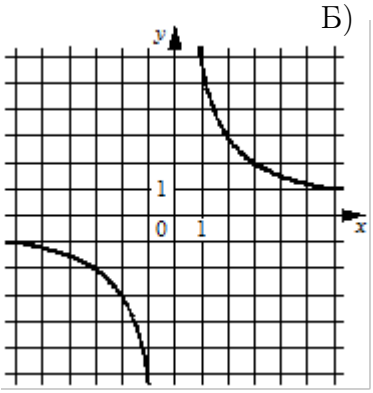

Б)

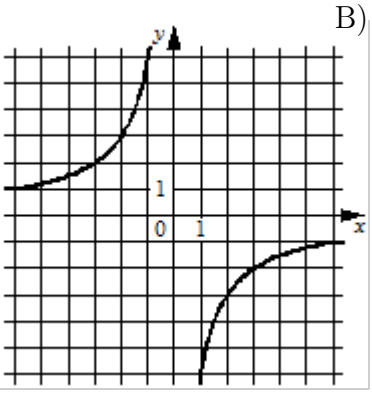

В)

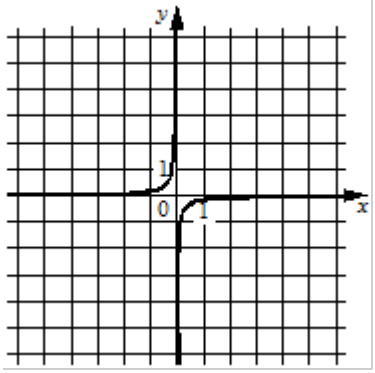

ФОРМУЛЫ

1) $y = -\dfrac{1}{6x}$ 2) $y = -\dfrac{6}{x}$ 3) $y = \dfrac{6}{x}$

В таблице под каждой буквой укажите соответствующий номер.

А	Б	В

9. Установите соответствие между графиками функций и формулами, которые их задают.

ГРАФИКИ

А) Б) В)

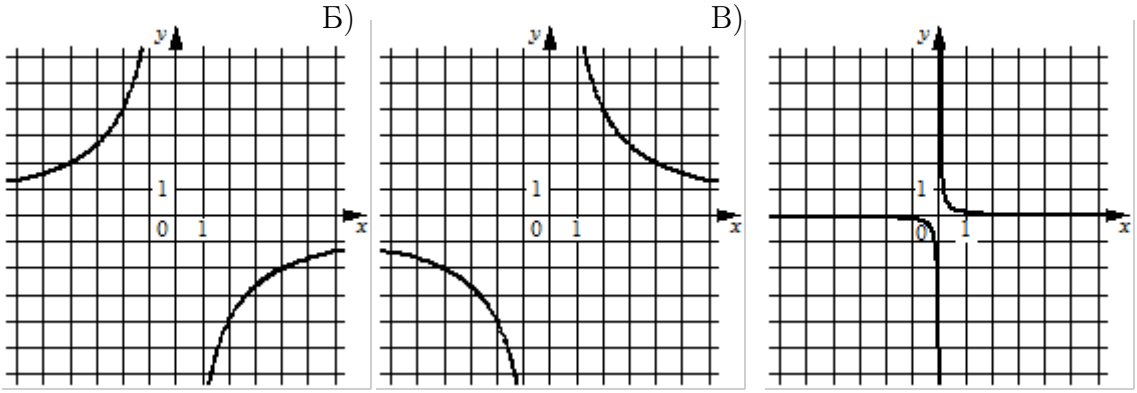

ФОРМУЛЫ

1) $y = \frac{8}{x}$ 2) $y = -\frac{8}{x}$ 3) $y = \frac{1}{8x}$

В таблице под каждой буквой укажите соответствующий номер.

А	Б	В

10. Установите соответствие между графиками функций и формулами, которые их задают.

ГРАФИКИ

А) Б) В)

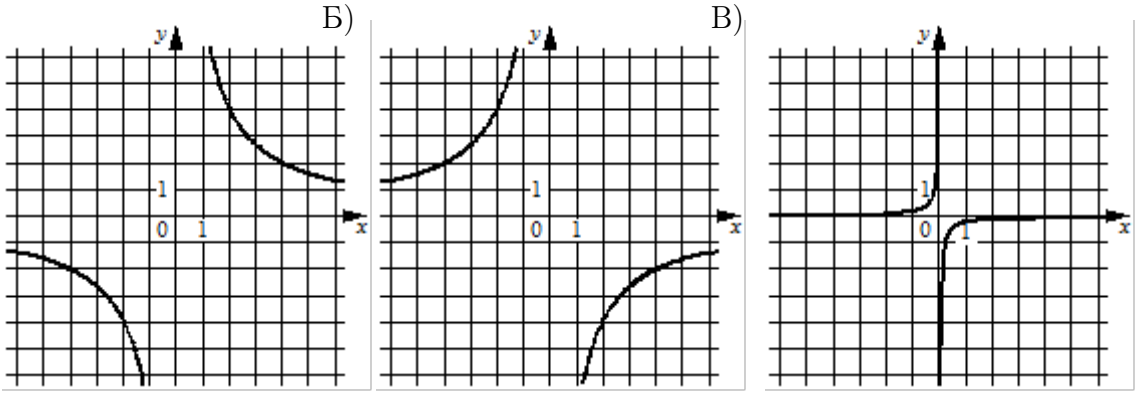

ФОРМУЛЫ

1) $y = \frac{8}{x}$ 2) $y = -\frac{1}{8x}$ 3) $y = -\frac{8}{x}$

В таблице под каждой буквой укажите соответствующий номер.

А	Б	В

11. Установите соответствие между графиками функций и формулами, которые их задают.

ГРАФИКИ

А)

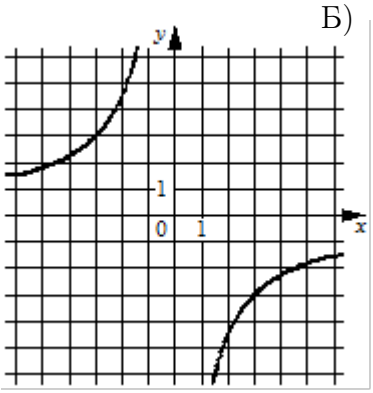

Б)

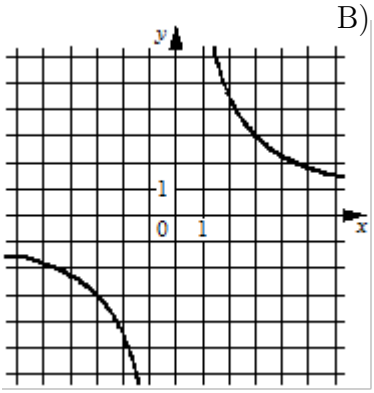

В)

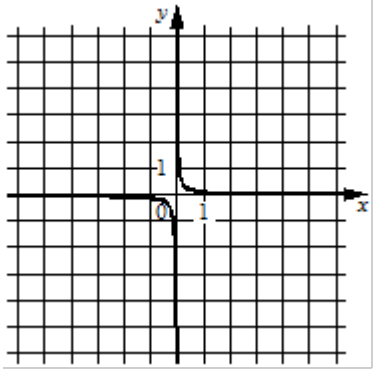

ФОРМУЛЫ

1) $y = \dfrac{1}{9x}$ 2) $y = \dfrac{9}{x}$ 3) $y = -\dfrac{9}{x}$

В таблице под каждой буквой укажите соответствующий номер.

А	Б	В

12. Установите соответствие между графиками функций и формулами, которые их задают.

ГРАФИКИ

А) Б) В)

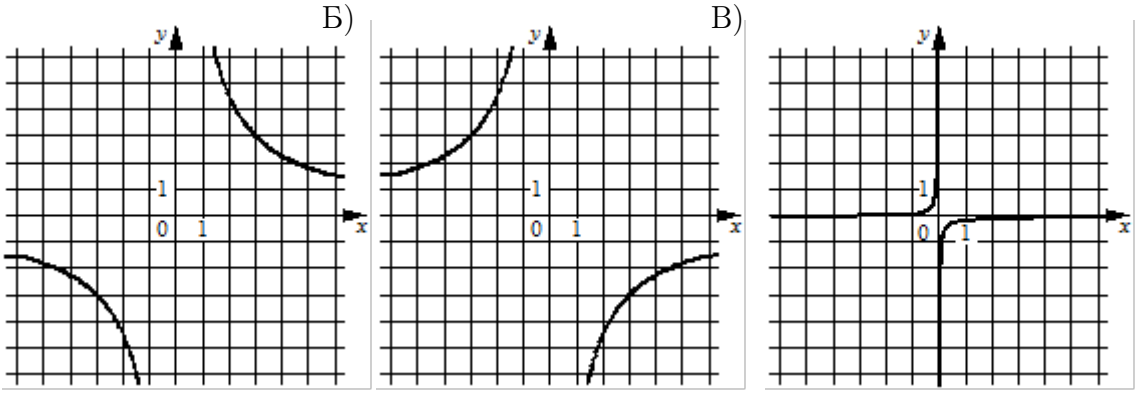

ФОРМУЛЫ

1) $y = \frac{9}{x}$ 2) $y = -\frac{9}{x}$ 3) $y = -\frac{1}{9x}$

В таблице под каждой буквой укажите соответствующий номер.

А	Б	В

13. Установите соответствие между графиками функций и формулами, которые их задают.

ГРАФИКИ

А) Б) В)

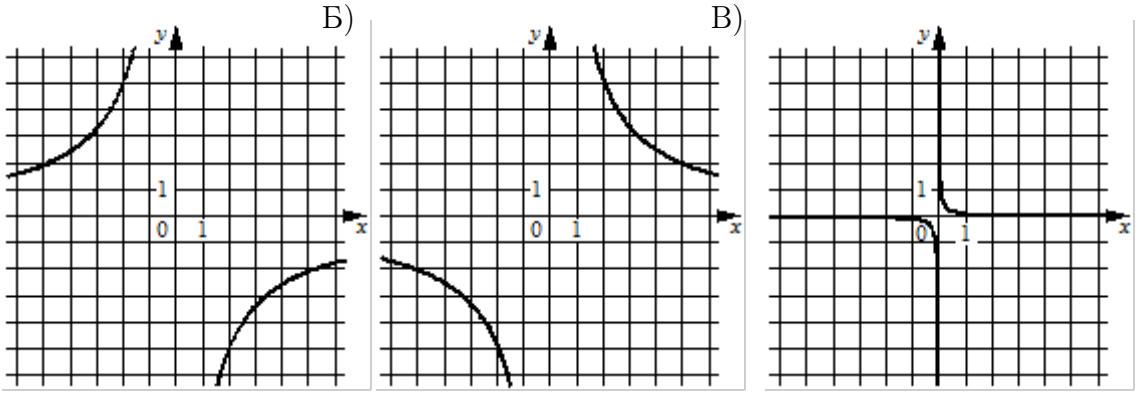

ФОРМУЛЫ

1) $y = \frac{10}{x}$ 2) $y = -\frac{10}{x}$ 3) $y = \frac{1}{10x}$

В таблице под каждой буквой укажите соответствующий номер.

А	Б	В

14. Установите соответствие между функциями и их графиками

ФУНКЦИИ

А) $y = -\dfrac{2}{x}$ Б) $y = \dfrac{2}{x}$ В) $y = \dfrac{1}{2x}$

ГРАФИКИ

1)

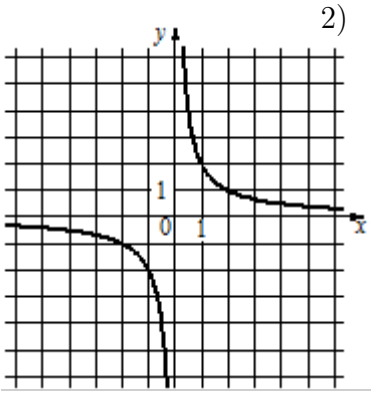

2)

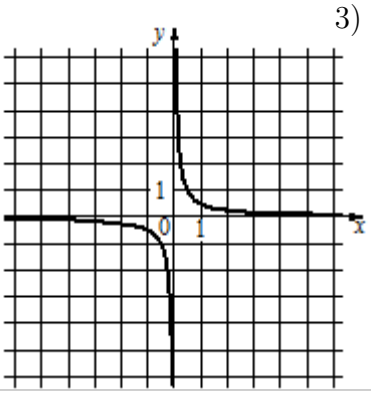

3)

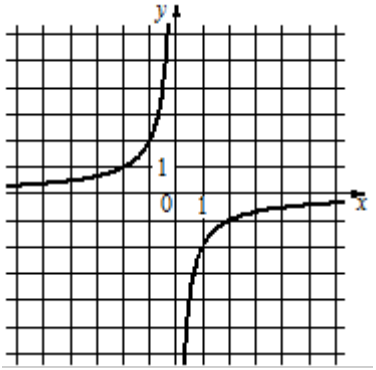

В таблице под каждой буквой укажите соответствующий номер.

А	Б	В

15. Установите соответствие между функциями и их графиками

ФУНКЦИИ

А) $y = \frac{2}{x}$ Б) $y = -\frac{2}{x}$ В) $y = -\frac{1}{2x}$

ГРАФИКИ

1) 2) 3)

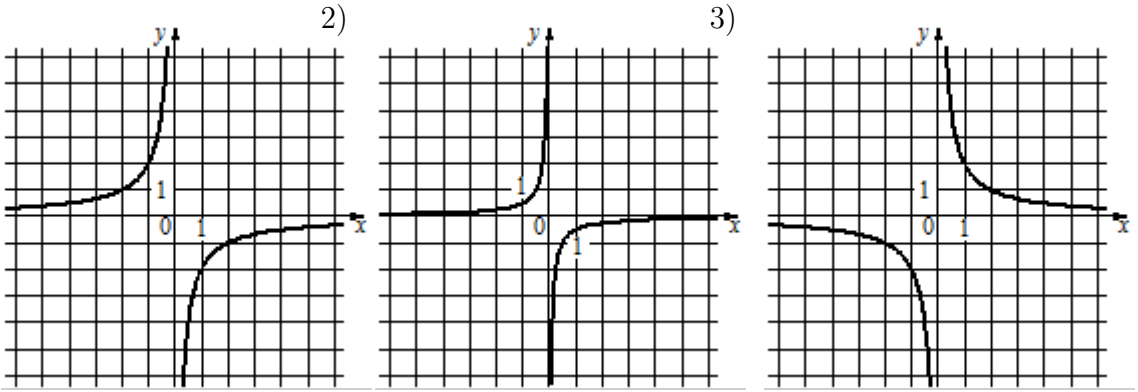

В таблице под каждой буквой укажите соответствующий номер.

А	Б	В

16. Установите соответствие между функциями и их графиками

ФУНКЦИИ

А) $y = -\frac{3}{x}$ Б) $y = \frac{3}{x}$ В) $y = \frac{1}{3x}$

ГРАФИКИ

1) 2) 3)

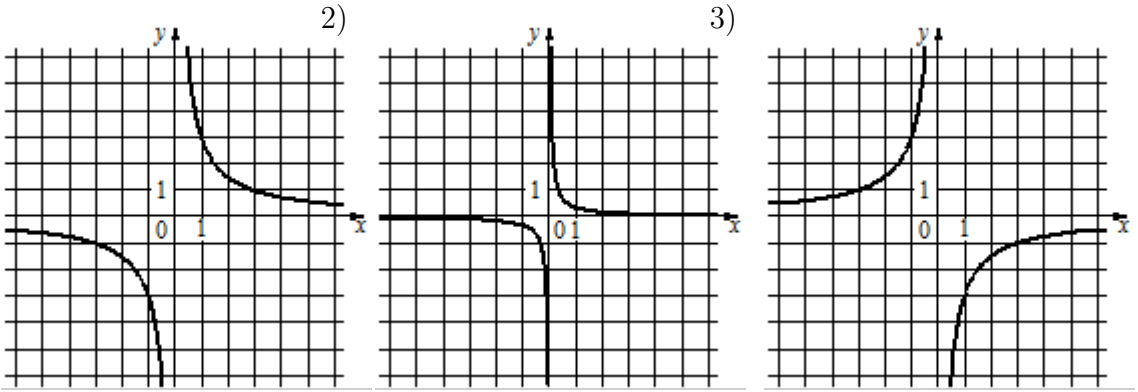

В таблице под каждой буквой укажите соответствующий номер.

А	Б	В

17. Установите соответствие между функциями и их графиками

ФУНКЦИИ

А) $y = \frac{3}{x}$ Б) $y = -\frac{3}{x}$ В) $y = -\frac{1}{3x}$

ГРАФИКИ

1) 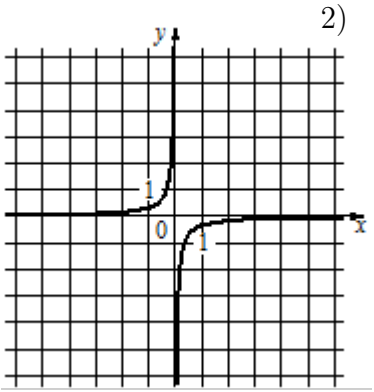

2) 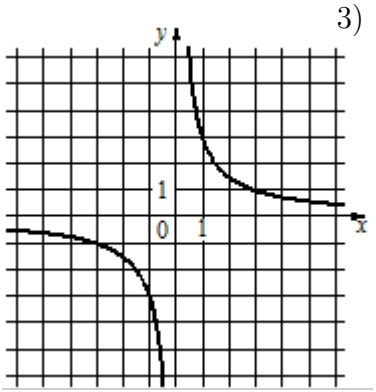

3) 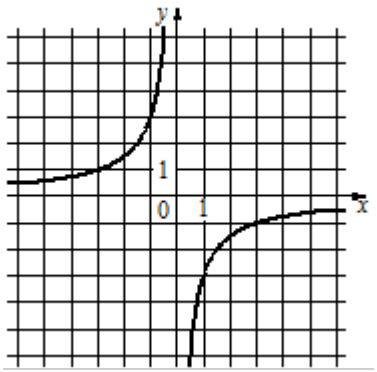

В таблице под каждой буквой укажите соответствующий номер.

А	Б	В

18. Установите соответствие между функциями и их графиками

ФУНКЦИИ

А) $y = -\frac{4}{x}$ Б) $y = \frac{1}{4x}$ В) $y = \frac{4}{x}$

ГРАФИКИ

1) 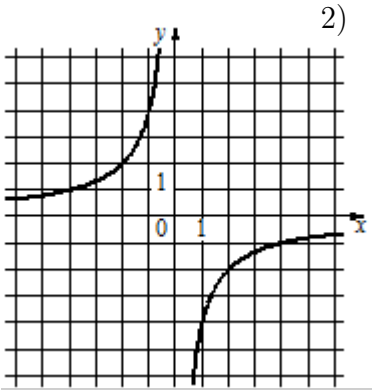

2) 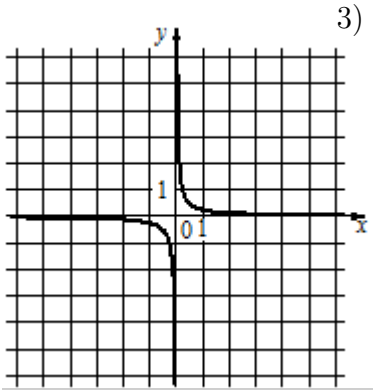

3) 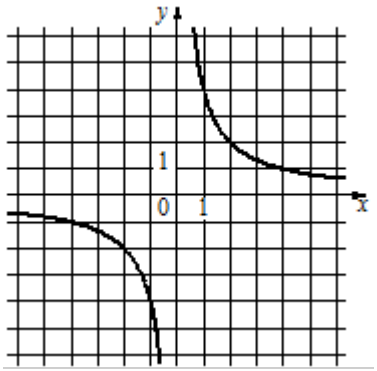

В таблице под каждой буквой укажите соответствующий номер.

А	Б	В

19. Установите соответствие между функциями и их графиками

ФУНКЦИИ

А) $y = \frac{4}{x}$ Б) $y = -\frac{1}{4x}$ В) $y = -\frac{4}{x}$

ГРАФИКИ

1) 2) 3)

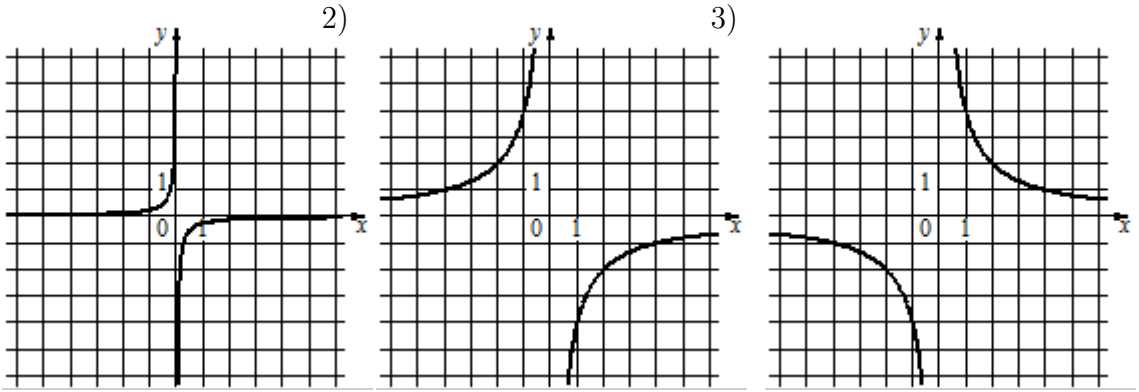

В таблице под каждой буквой укажите соответствующий номер.

А	Б	В

20. Установите соответствие между функциями и их графиками

ФУНКЦИИ

А) $y = \frac{1}{6x}$ Б) $y = -\frac{6}{x}$ В) $y = \frac{6}{x}$

ГРАФИКИ

1) 2) 3)

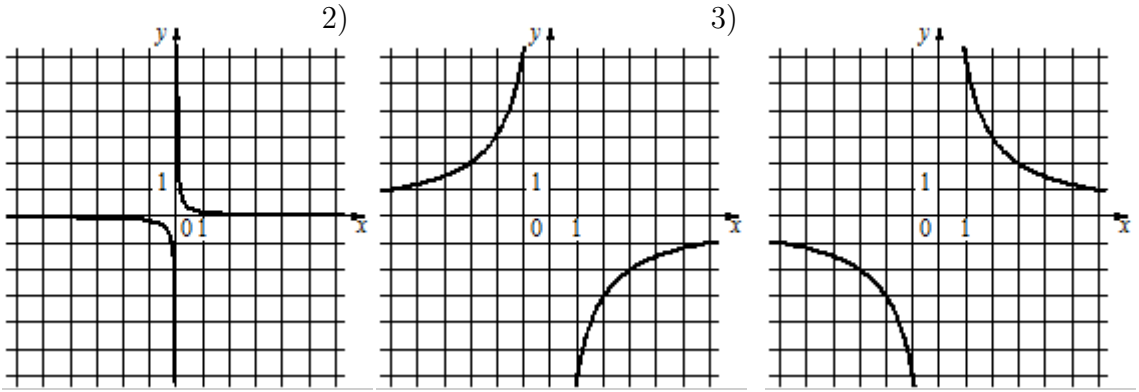

В таблице под каждой буквой укажите соответствующий номер.

А	Б	В

21. Установите соответствие между функциями и их графиками

ФУНКЦИИ

А) $y = \frac{8}{x}$ Б) $y = \frac{1}{8x}$ В) $y = -\frac{8}{x}$

ГРАФИКИ

1) 2) 3)

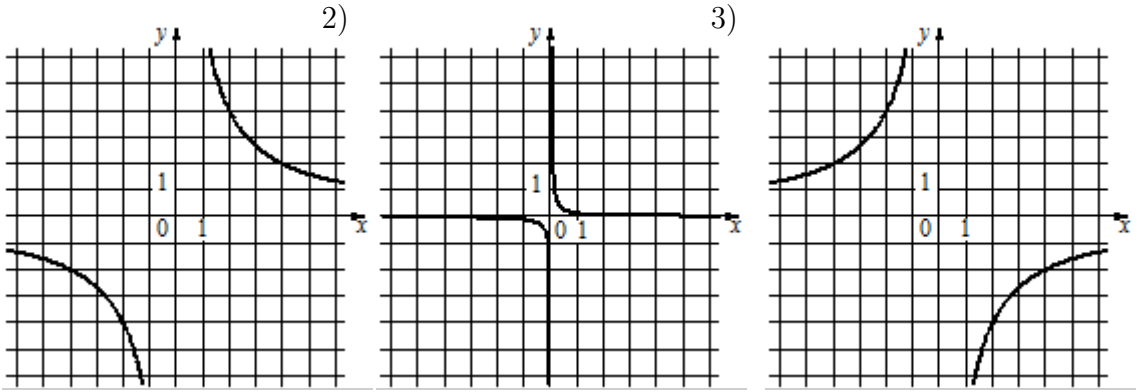

В таблице под каждой буквой укажите соответствующий номер.

А	Б	В

22. Установите соответствие между функциями и их графиками

ФУНКЦИИ

А) $y = \frac{8}{x}$ Б) $y = -\frac{1}{8x}$ В) $y = -\frac{8}{x}$

ГРАФИКИ

1) 2) 3)

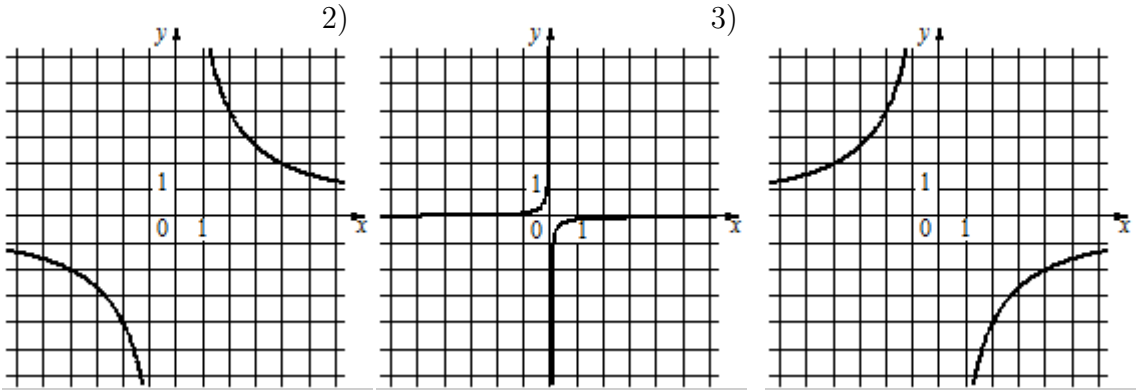

В таблице под каждой буквой укажите соответствующий номер.

А	Б	В

23. Установите соответствие между функциями и их графиками

ФУНКЦИИ

А) $y = \frac{1}{9x}$ Б) $y = \frac{9}{x}$ В) $y = -\frac{9}{x}$

ГРАФИКИ

1) 2) 3)

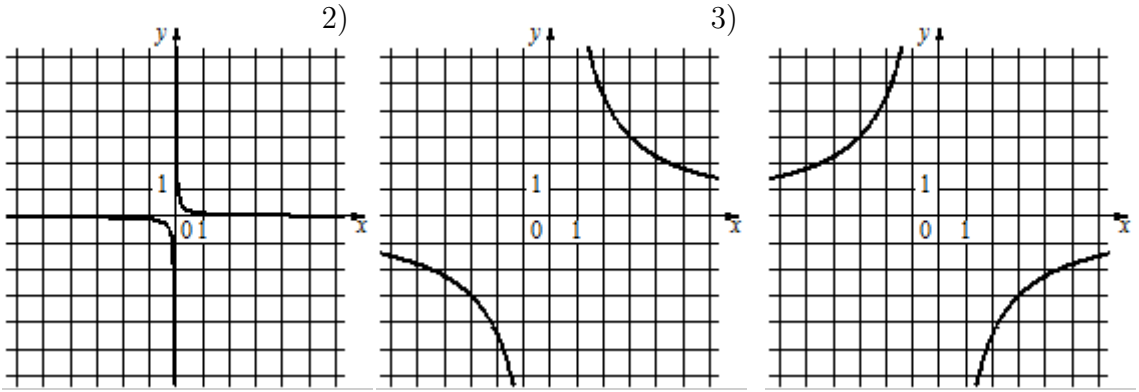

В таблице под каждой буквой укажите соответствующий номер.

А	Б	В

24. Установите соответствие между функциями и их графиками

ФУНКЦИИ

А) $y = -\frac{9}{x}$ Б) $y = \frac{9}{x}$ В) $y = -\frac{1}{9x}$

ГРАФИКИ

1) 2) 3)

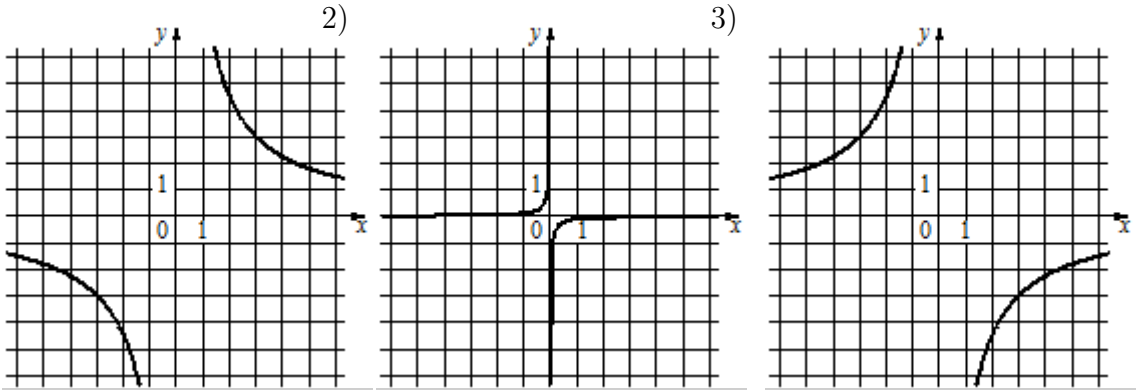

В таблице под каждой буквой укажите соответствующий номер.

А	Б	В

25. Установите соответствие между функциями и их графиками

ФУНКЦИИ

А) $y = -\dfrac{12}{x}$ Б) $y = \dfrac{1}{12x}$ В) $y = \dfrac{12}{x}$

ГРАФИКИ

1)
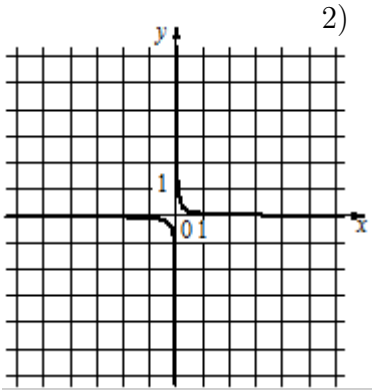

2)
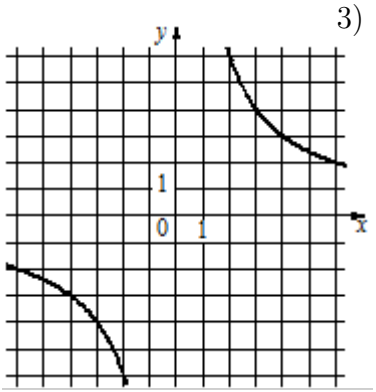

3)
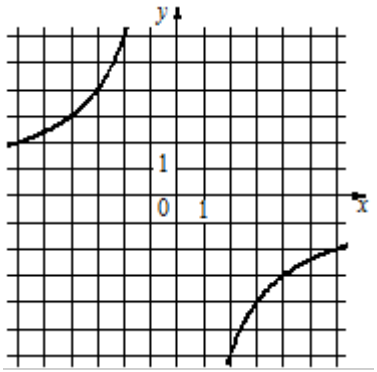

В таблице под каждой буквой укажите соответствующий номер.

А	Б	В

26. Установите соответствие между функциями и их графиками

ФУНКЦИИ

А) $y = \dfrac{12}{x}$ Б) $y = -\dfrac{12}{x}$ В) $y = -\dfrac{1}{12x}$

ГРАФИКИ

1)
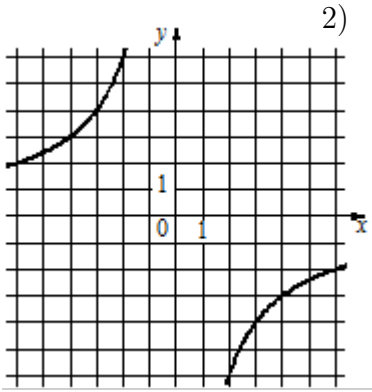

2)
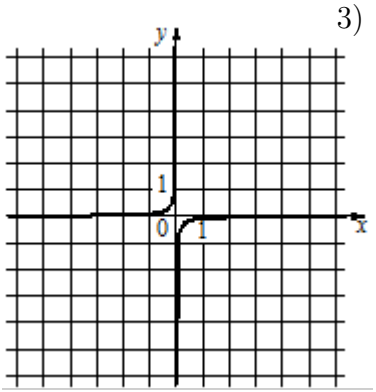

3)
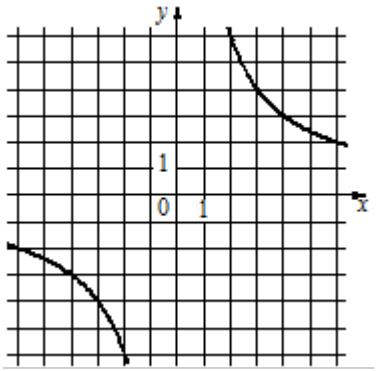

В таблице под каждой буквой укажите соответствующий номер.

А	Б	В

Задача 4

1. Установите соответствие между графиками функций и формулами, которые их задают.

ГРАФИКИ

А)

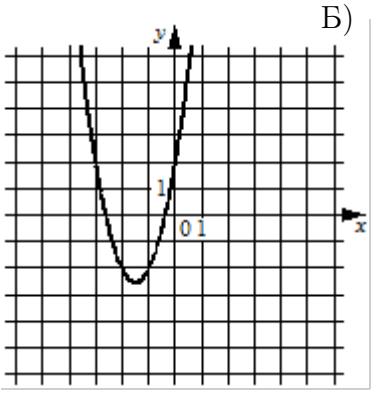

Б)

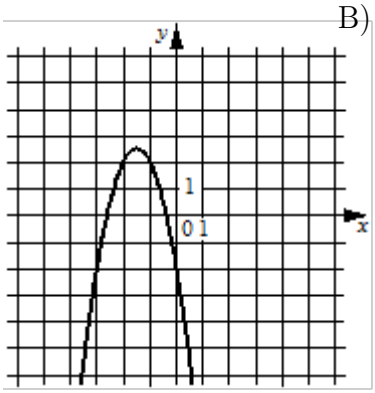

В)

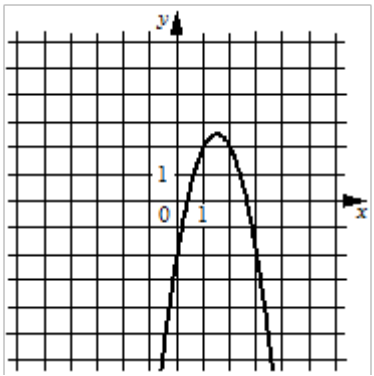

ФОРМУЛЫ

1) $y = -2x^2 + 6x - 2$ 2) $y = -2x^2 - 6x - 2$ 3) $y = 2x^2 + 6x + 2$

В таблице под каждой буквой укажите соответствующий номер.

А	Б	В

2. Установите соответствие между графиками функций и формулами, которые их задают.

ГРАФИКИ

А) Б) В)

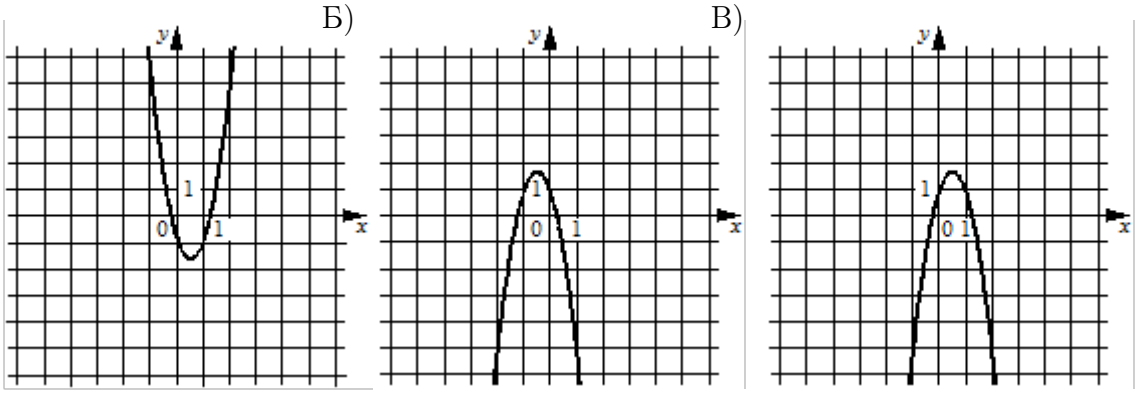

ФОРМУЛЫ

1) $y = -3x^2 + 3x + 1$ 2) $y = -3x^2 - 3x + 1$ 3) $y = 3x^2 - 3x - 1$

В таблице под каждой буквой укажите соответствующий номер.

А	Б	В

3. Установите соответствие между графиками функций и формулами, которые их задают.

ГРАФИКИ

А) Б) В)

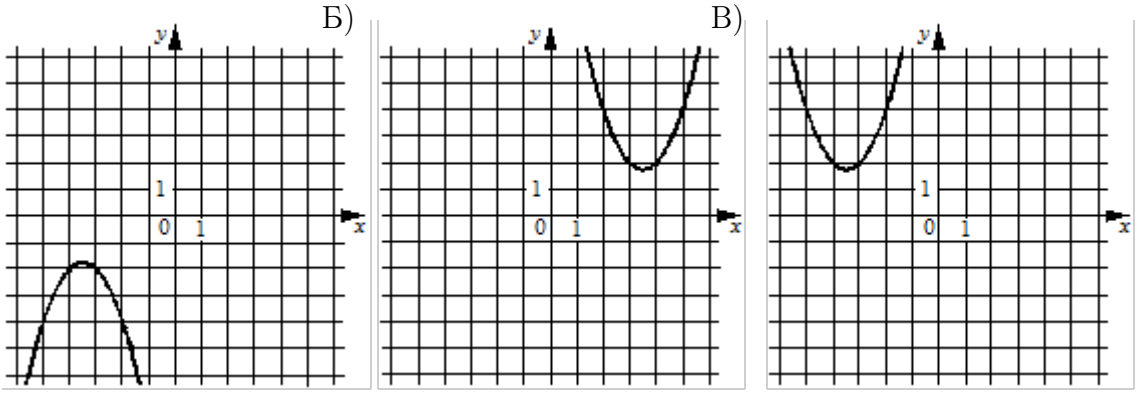

ФОРМУЛЫ

1) $y = x^2 - 7x + 14$ 2) $y = x^2 + 7x + 14$ 3) $y = -x^2 - 7x - 14$

В таблице под каждой буквой укажите соответствующий номер.

А	Б	В

4. Установите соответствие между графиками функций и формулами, которые их задают.

ГРАФИКИ

А)

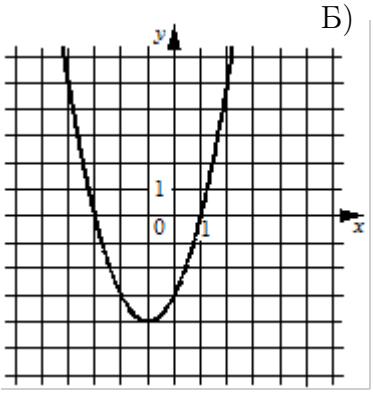

Б)

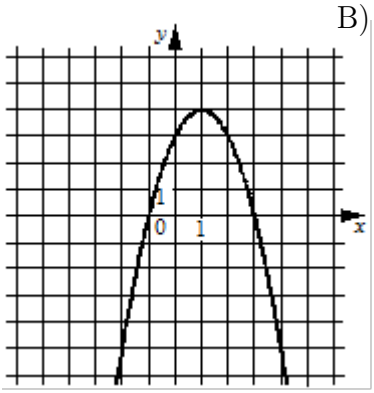

В)

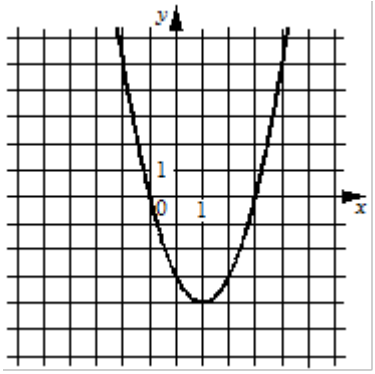

ФОРМУЛЫ

1) $y = x^2 + 2x - 3$ 2) $y = x^2 - 2x - 3$ 3) $y = -x^2 + 2x + 3$

В таблице под каждой буквой укажите соответствующий номер.

А	Б	В

5. Установите соответствие между графиками функций и формулами, которые их задают.

ГРАФИКИ

А)

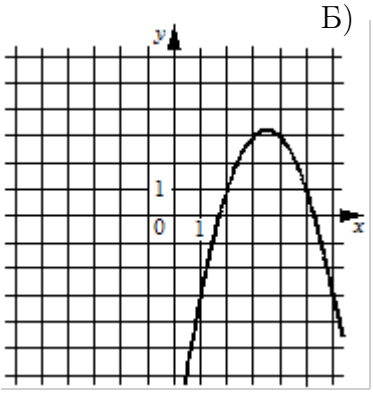

Б)

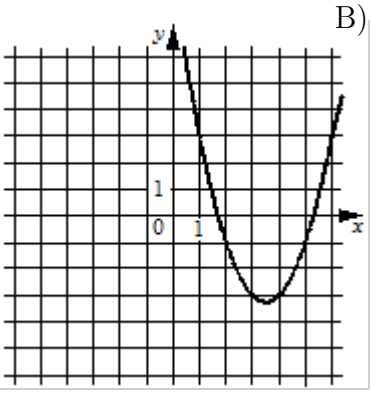

В)

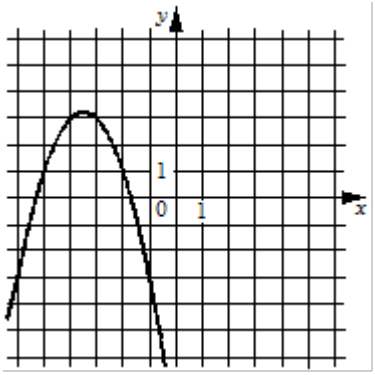

ФОРМУЛЫ

1) $y = x^2 - 7x + 9$ 2) $y = -x^2 - 7x - 9$ 3) $y = -x^2 + 7x - 9$

В таблице под каждой буквой укажите соответствующий номер.

А	Б	В

6. Установите соответствие между графиками функций и формулами, которые их задают.

ГРАФИКИ

А) Б) В)

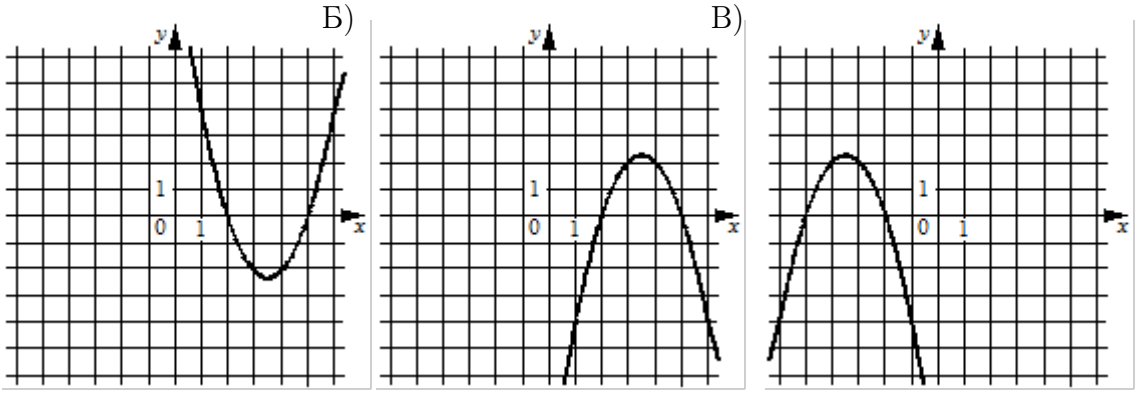

ФОРМУЛЫ

1) $y = x^2 - 7x + 10$ 2) $y = -x^2 - 7x - 10$ 3) $y = -x^2 + 7x - 10$

В таблице под каждой буквой укажите соответствующий номер.

А	Б	В

7. Установите соответствие между графиками функций и формулами, которые их задают.

ГРАФИКИ

А) Б) В)

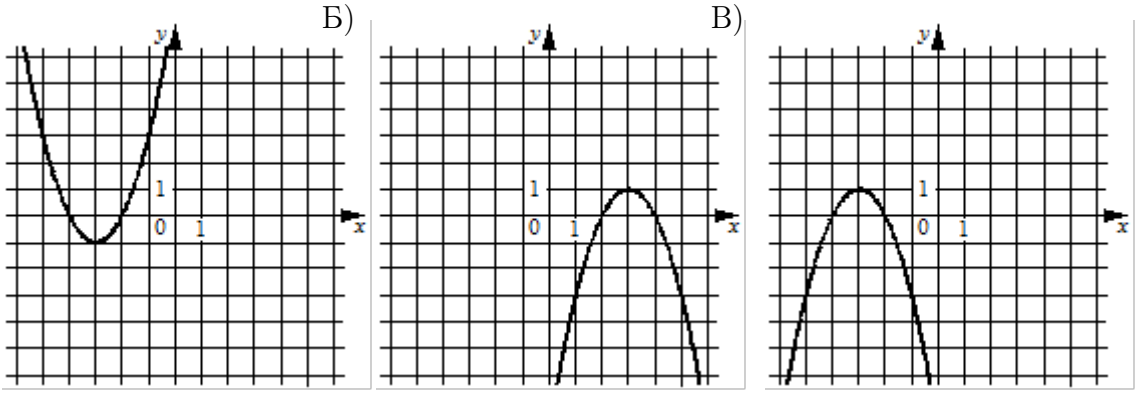

ФОРМУЛЫ

1) $y = -x^2 + 6x - 8$ 2) $y = x^2 + 6x + 8$ 3) $y = -x^2 - 6x - 8$

В таблице под каждой буквой укажите соответствующий номер.

А	Б	В

8. Установите соответствие между графиками функций и формулами, которые их задают.

ГРАФИКИ

А)

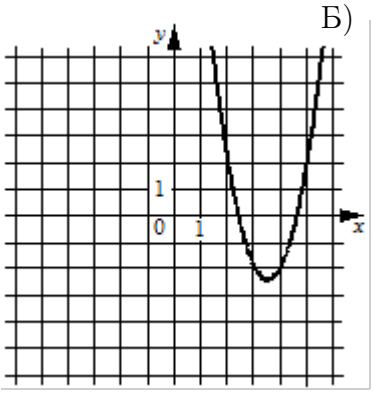

Б)

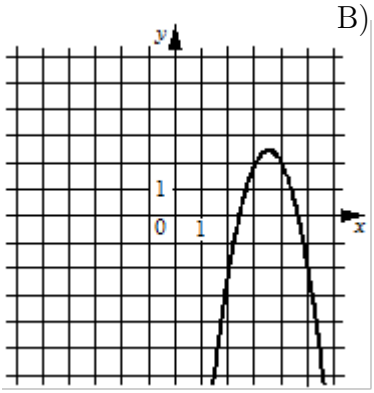

В)

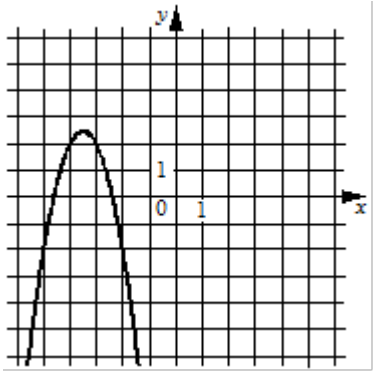

ФОРМУЛЫ

1) $y = 2x^2 - 14x + 22$ 2) $y = -2x^2 - 14x - 22$ 3) $y = -2x^2 + 14x - 22$

В таблице под каждой буквой укажите соответствующий номер.

А	Б	В

9. Установите соответствие между графиками функций и формулами, которые их задают.

ГРАФИКИ

А) Б) В)

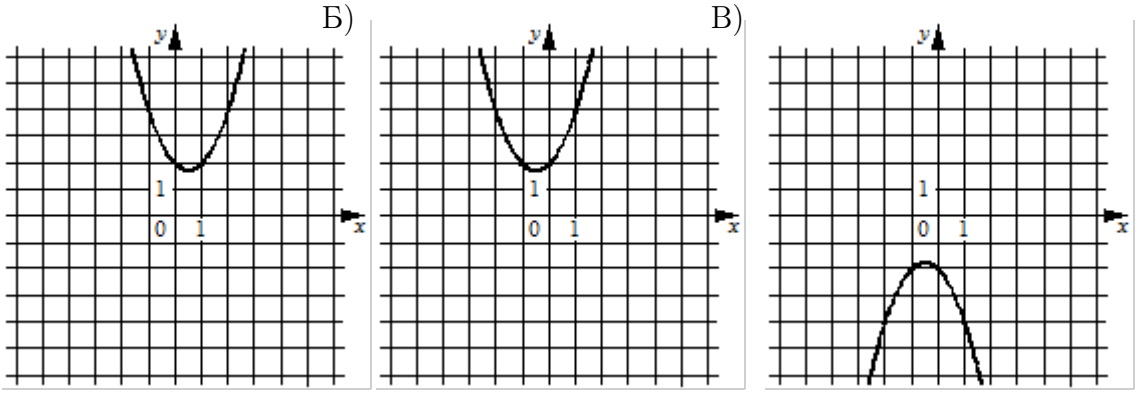

ФОРМУЛЫ

1) $y = -x^2 - x - 2$ 2) $y = x^2 + x + 2$ 3) $y = x^2 - x + 2$

В таблице под каждой буквой укажите соответствующий номер.

А	Б	В

10. Установите соответствие между графиками функций и формулами, которые их задают.

ГРАФИКИ

А) Б) В)

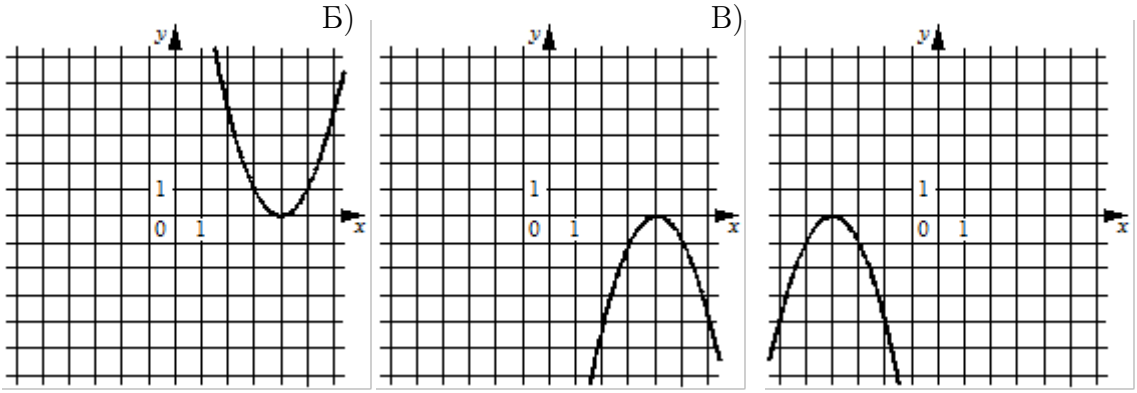

ФОРМУЛЫ

1) $y = x^2 - 8x + 16$ 2) $y = -x^2 - 8x - 16$ 3) $y = -x^2 + 8x - 16$

В таблице под каждой буквой укажите соответствующий номер.

А	Б	В

11. Установите соответствие между графиками функций и формулами, которые их задают.

ГРАФИКИ

А)

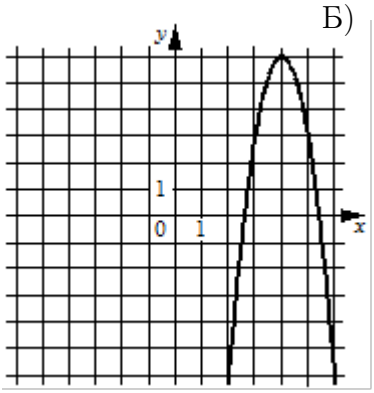

Б)

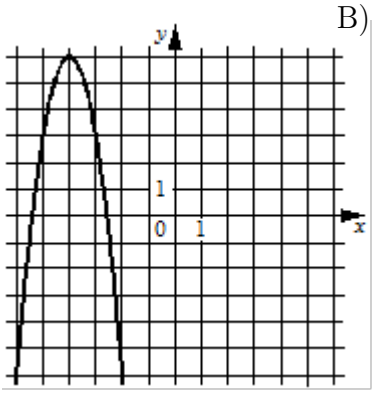

В)

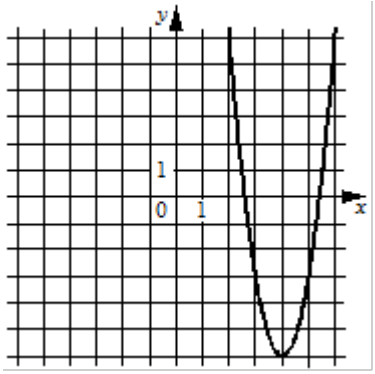

ФОРМУЛЫ

1) $y = -3x^2 + 24x - 42$ 2) $y = 3x^2 - 24x + 42$ 3) $y = -3x^2 - 24x - 42$

В таблице под каждой буквой укажите соответствующий номер.

А	Б	В

12. Установите соответствие между графиками функций и формулами, которые их задают.

ГРАФИКИ

А)

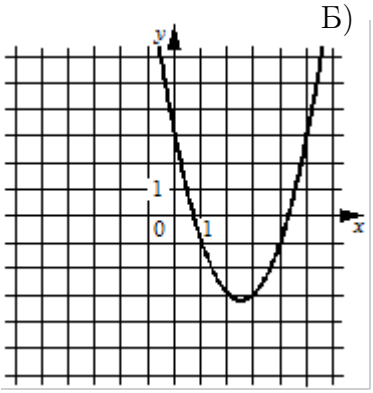

Б)

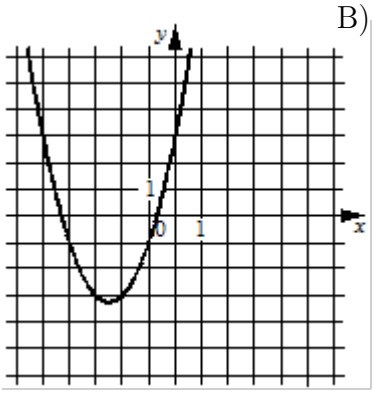

В)

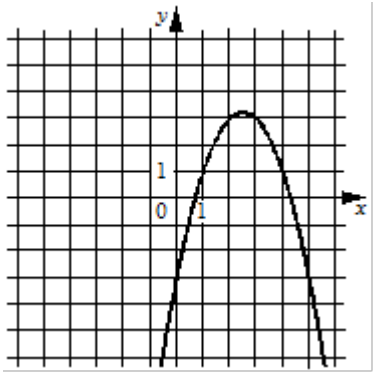

ФОРМУЛЫ

1) $y = x^2 - 5x + 3$ 2) $y = -x^2 + 5x - 3$ 3) $y = x^2 + 5x + 3$

В таблице под каждой буквой укажите соответствующий номер.

А	Б	В

13. Установите соответствие между функциями и их графиками.

ФУНКЦИИ

А) $y = x^2 + 4x + 1$ Б) $y = x^2 - 4x + 1$ В) $y = -x^2 + 4x - 1$

ГРАФИКИ

1) 2) 3)

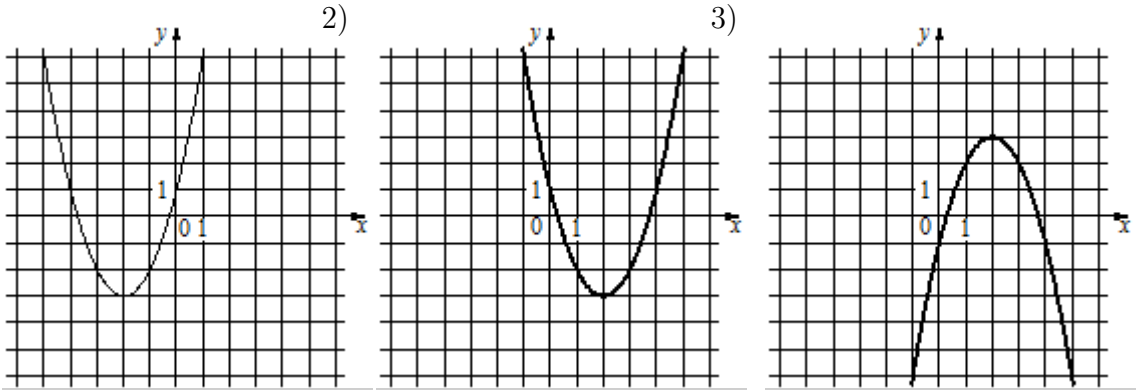

В таблице под каждой буквой укажите соответствующий номер.

А	Б	В

14. Установите соответствие между функциями и их графиками.

ФУНКЦИИ

А) $y = x^2 + 8x + 12$ Б) $y = x^2 - 8x + 12$ В) $y = -x^2 + 8x - 12$

ГРАФИКИ

1) 2) 3)

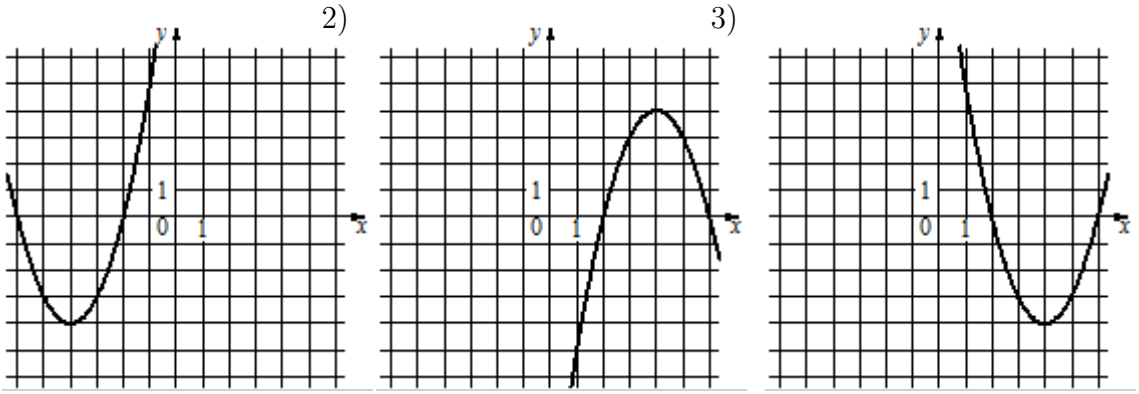

В таблице под каждой буквой укажите соответствующий номер.

А	Б	В

15. Установите соответствие между функциями и их графиками.

ФУНКЦИИ

А) $y = -x^2 - 4x - 3$ Б) $y = -x^2 + 4x - 3$ В) $y = x^2 + 4x + 3$

ГРАФИКИ

1) 2) 3)

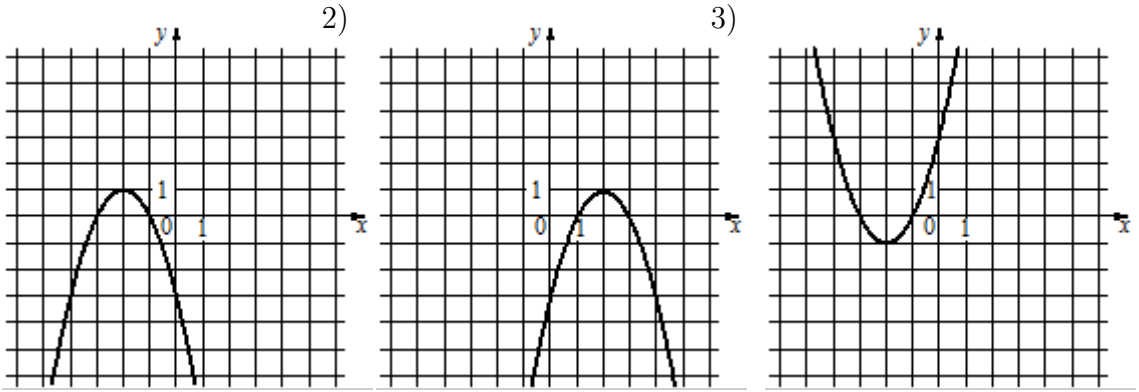

В таблице под каждой буквой укажите соответствующий номер.

А	Б	В

16. Установите соответствие между функциями и их графиками.

ФУНКЦИИ

А) $y = -2x^2 - 4x + 2$ Б) $y = 2x^2 + 4x - 2$ В) $y = 2x^2 - 4x - 2$

ГРАФИКИ

1) 2) 3)

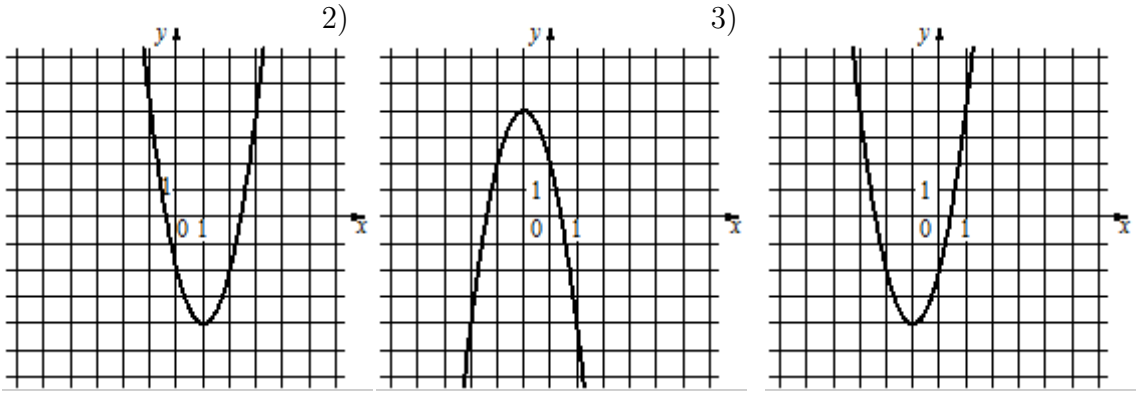

В таблице под каждой буквой укажите соответствующий номер.

А	Б	В

17. Установите соответствие между функциями и их графиками.

ФУНКЦИИ

А) $y = 2x^2 - 14x + 23$ Б) $y = 2x^2 + 14x + 23$ В) $y = -2x^2 - 14x - 23$

ГРАФИКИ

1) 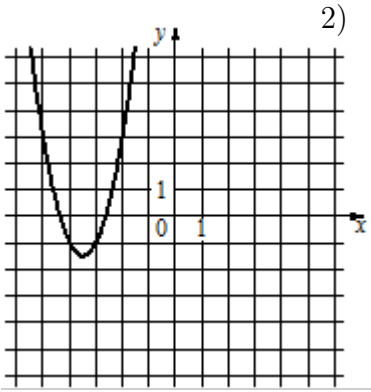

2) 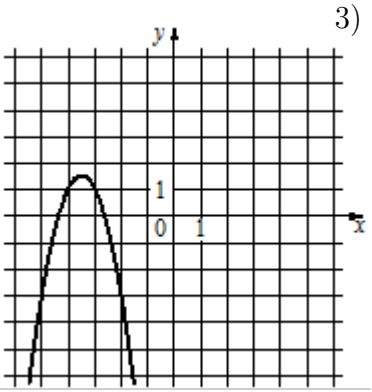

3) 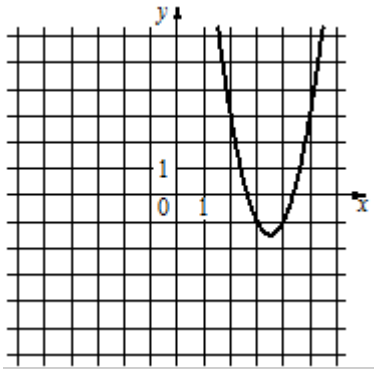

В таблице под каждой буквой укажите соответствующий номер.

А	Б	В

18. Установите соответствие между функциями и их графиками.

ФУНКЦИИ

А) $y = -2x^2 + 12x - 16$ Б) $y = 2x^2 - 12x + 16$ В) $y = 2x^2 + 12x + 16$

ГРАФИКИ

1) 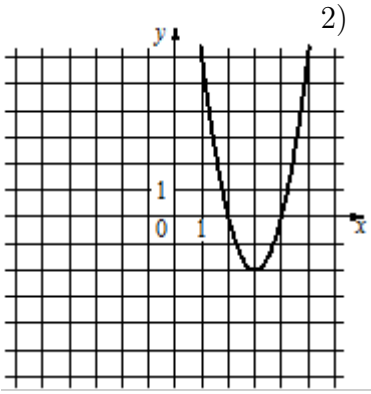

2) 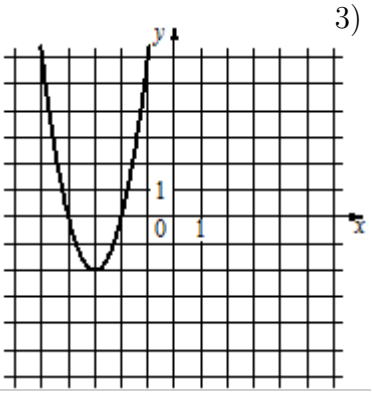

3) 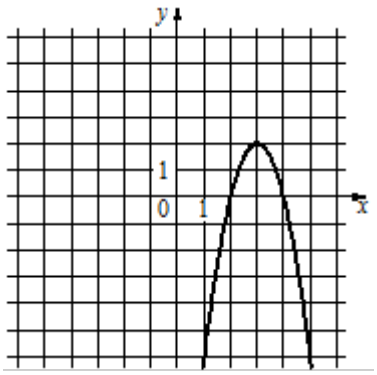

В таблице под каждой буквой укажите соответствующий номер.

А	Б	В

19. Установите соответствие между функциями и их графиками.

ФУНКЦИИ

А) $y = x^2 - 7x + 13$ Б) $y = -x^2 + 7x - 13$ В) $y = x^2 + 7x + 13$

ГРАФИКИ

1) 2) 3)

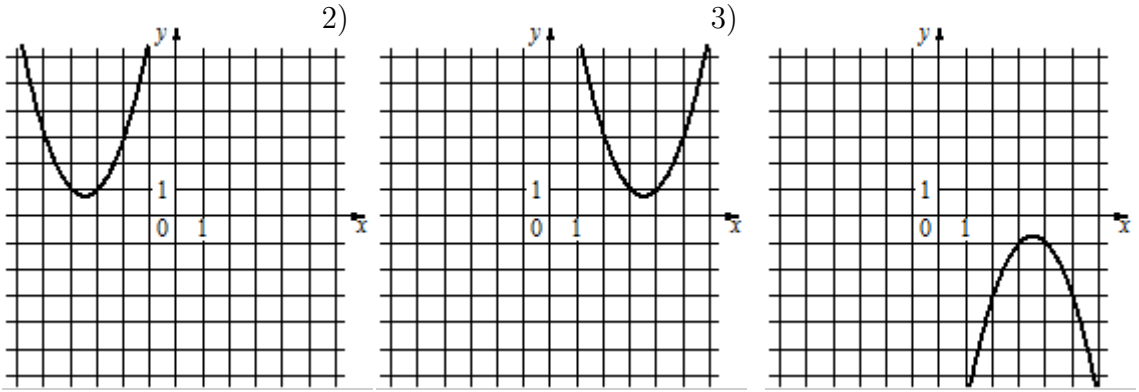

В таблице под каждой буквой укажите соответствующий номер.

А	Б	В

20. Установите соответствие между функциями и их графиками.

ФУНКЦИИ

А) $y = -3x^2 + 21x - 32$ Б) $y = 3x^2 + 21x + 32$ В) $y = 3x^2 - 21x + 32$

ГРАФИКИ

1) 2) 3)

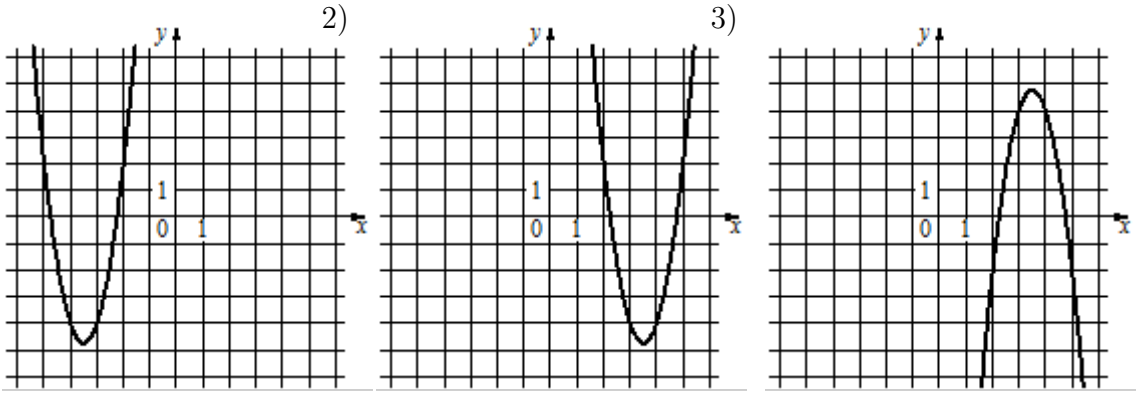

В таблице под каждой буквой укажите соответствующий номер.

А	Б	В

21. Установите соответствие между функциями и их графиками.

ФУНКЦИИ

А) $y = 2x^2 - 10x + 8$ Б) $y = -2x^2 + 10x - 8$ В) $y = -2x^2 - 10x - 8$

ГРАФИКИ

1) 2) 3)

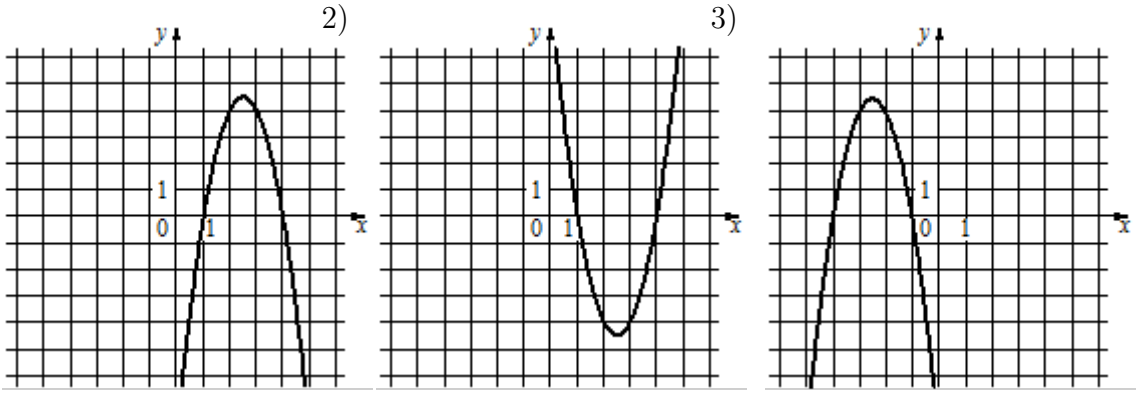

В таблице под каждой буквой укажите соответствующий номер.

А	Б	В

22. Установите соответствие между функциями и их графиками.

ФУНКЦИИ

А) $y = -x^2 + 2x + 5$ Б) $y = x^2 + 2x - 5$ В) $y = -x^2 - 2x + 5$

ГРАФИКИ

1) 2) 3)

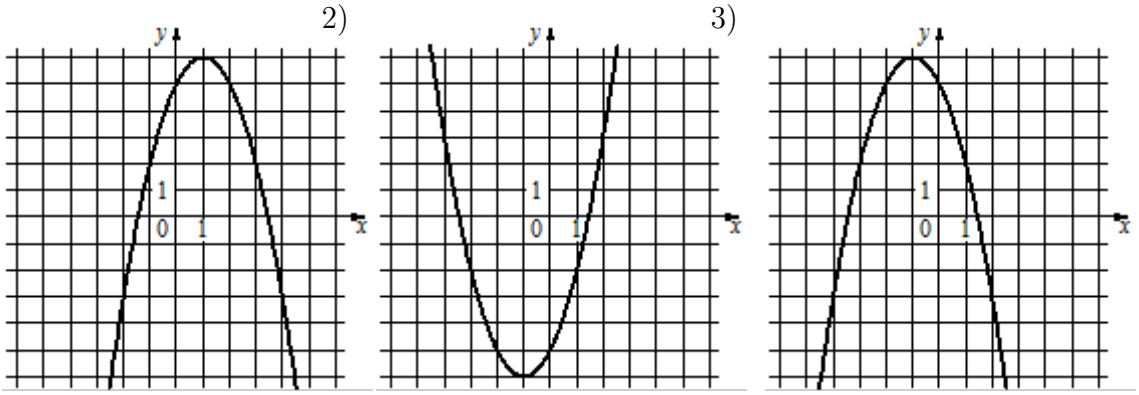

В таблице под каждой буквой укажите соответствующий номер.

А	Б	В

23. Установите соответствие между функциями и их графиками.

ФУНКЦИИ

А) $y = -4x^2 - 28x - 46$ Б) $y = 4x^2 - 28x + 46$ В) $y = -4x^2 + 28x - 46$

ГРАФИКИ

1) 2) 3)

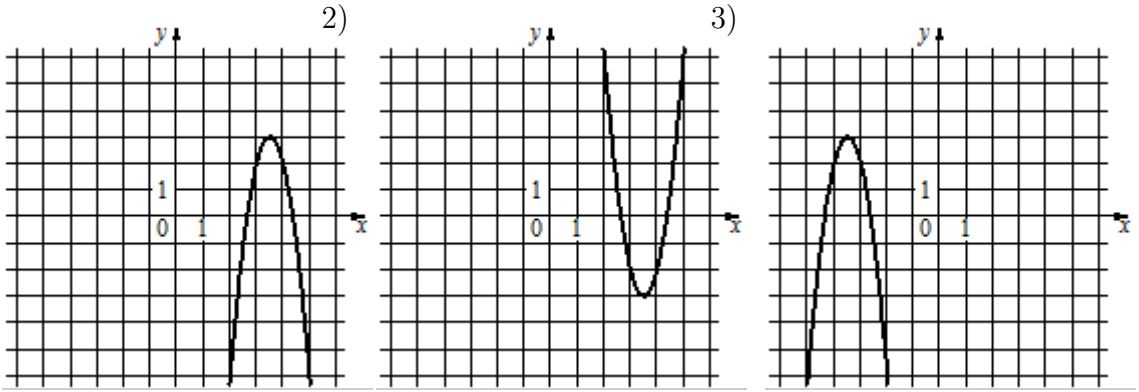

В таблице под каждой буквой укажите соответствующий номер.

А	Б	В

24. Установите соответствие между функциями и их графиками.

ФУНКЦИИ

А) $y = -x^2 + 6x - 10$ Б) $y = -x^2 - 6x - 10$ В) $y = x^2 - 6x + 10$

ГРАФИКИ

1) 2) 3)

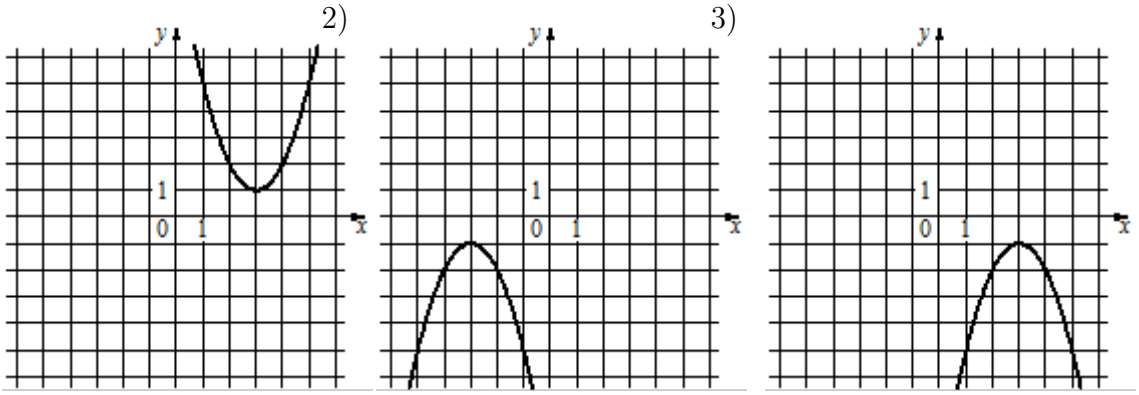

В таблице под каждой буквой укажите соответствующий номер.

А	Б	В

25. Установите соответствие между функциями и их графиками.

ФУНКЦИИ

А) $y = -x^2 + 2x + 4$ Б) $y = x^2 - 2x - 4$ В) $y = -x^2 - 2x + 4$

ГРАФИКИ

1) 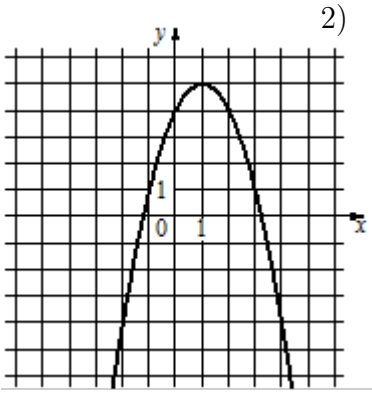

2) 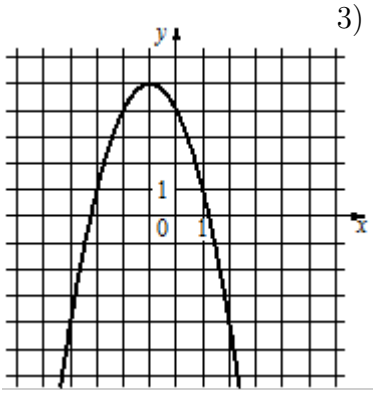

3) 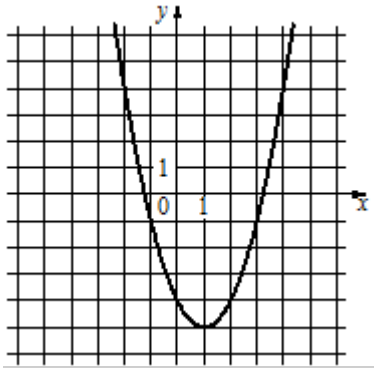

В таблице под каждой буквой укажите соответствующий номер.

А	Б	В

26. Установите соответствие между графиками функций и формулами, которые их задают

ГРАФИКИ

А) 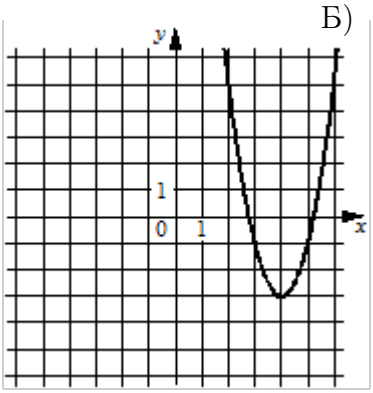

Б) 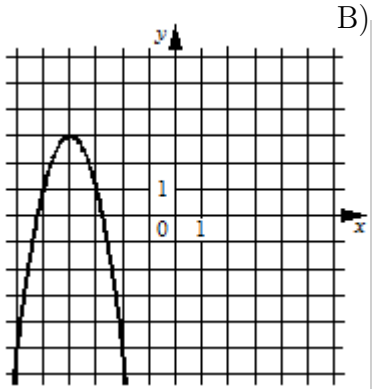

В) 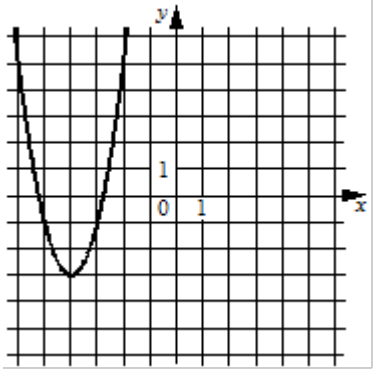

ФОРМУЛЫ

1) $y = 2x^2 - 16x + 29$ 2) $y = 2x^2 + 16x + 29$ 3) $y = -2x^2 - 16x - 29$

В таблице под каждой буквой укажите соответствующий номер.

А	Б	В

Задача 5

1. На рисунках изображены графики функций вида $y = ax^2 + bx + c$. Установите соответствие между знаками коэффициентов a и c и графиками функций.

   КОЭФФИЦИЕНТЫ

   А) $a > 0, c < 0$ Б) $a < 0, c > 0$ В) $a > 0, c > 0$

   ГРАФИКИ

   1) 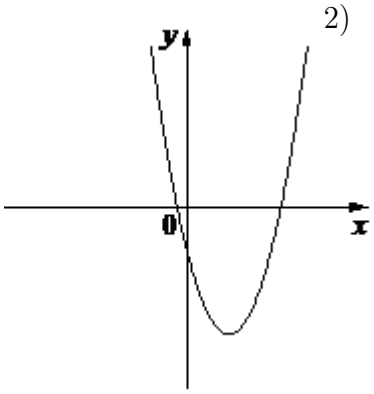

   2) 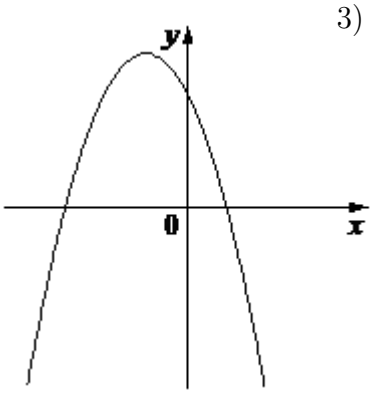

   3) 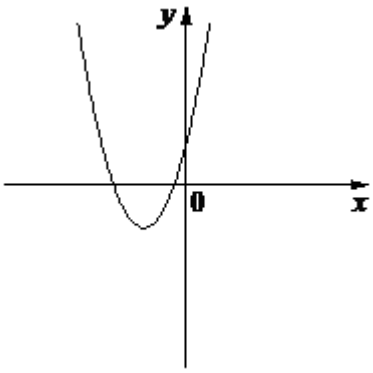

   В таблице под каждой буквой укажите соответствующий номер.

А	Б	В

2. На рисунках изображены графики функций вида $y = ax^2 + bx + c$. Установите соответствие между знаками коэффициентов a и c и графиками функций.

   КОЭФФИЦИЕНТЫ

   А) $a > 0, c < 0$ Б) $a > 0, c > 0$ В) $a < 0, c > 0$

   ГРАФИКИ

   1) 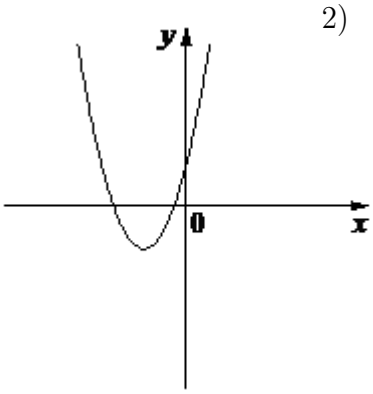

   2) 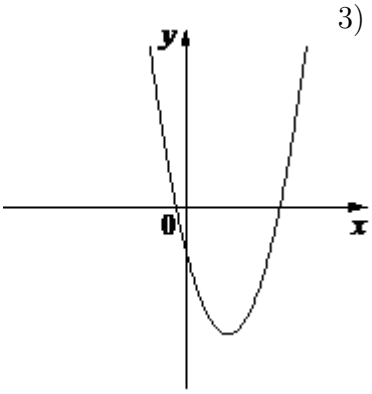

   3) 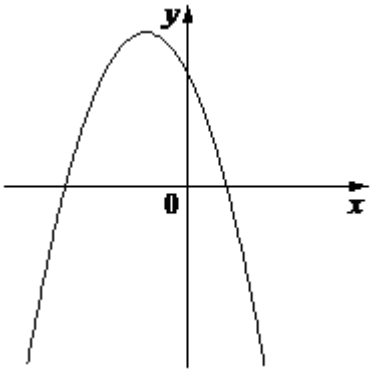

В таблице под каждой буквой укажите соответствующий номер.

А	Б	В

3. На рисунках изображены графики функций вида $y = ax^2 + bx + c$. Установите соответствие между знаками коэффициентов a и c и графиками функций.

КОЭФФИЦИЕНТЫ

А) $a > 0, c < 0$ Б) $a < 0, c > 0$ В) $a > 0, c > 0$

ГРАФИКИ

1)

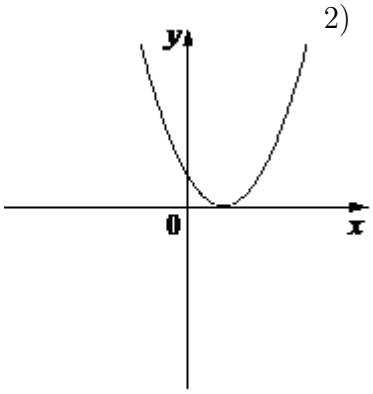

2)

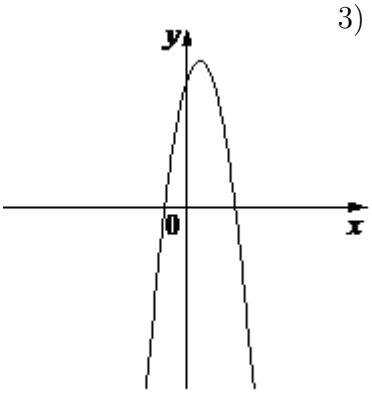

3)

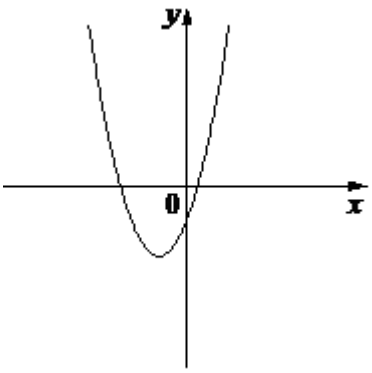

В таблице под каждой буквой укажите соответствующий номер.

А	Б	В

4. На рисунках изображены графики функций вида $y = ax^2 + bx + c$. Установите соответствие между знаками коэффициентов a и c и графиками функций.

КОЭФФИЦИЕНТЫ

А) $a > 0, c < 0$ Б) $a < 0, c > 0$ В) $a > 0, c > 0$

ГРАФИКИ

1) 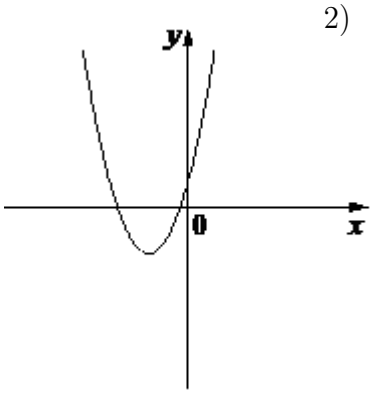

2) 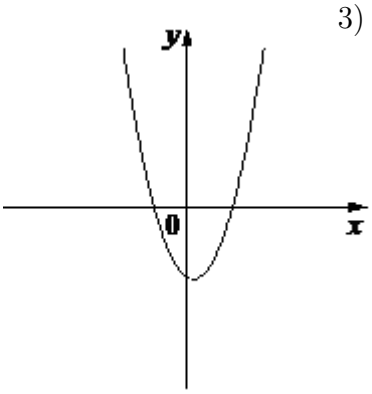

3) 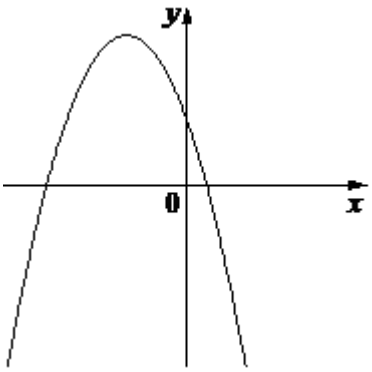

В таблице под каждой буквой укажите соответствующий номер.

А	Б	В

5. На рисунках изображены графики функций вида $y = ax^2 + bx + c$. Установите соответствие между знаками коэффициентов a и c и графиками функций.

КОЭФФИЦИЕНТЫ

А) $a < 0, c > 0$ Б) $a > 0, c > 0$ В) $a > 0, c < 0$

ГРАФИКИ

1) 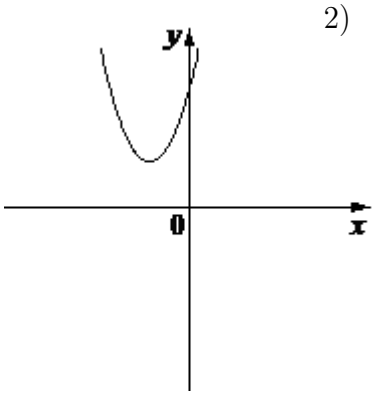

2) 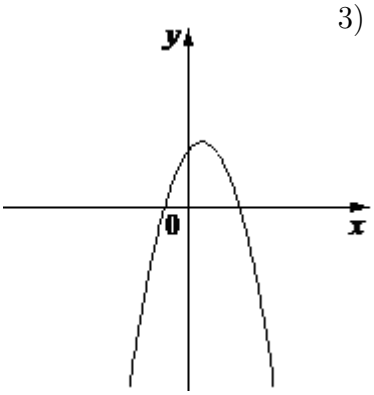

3) 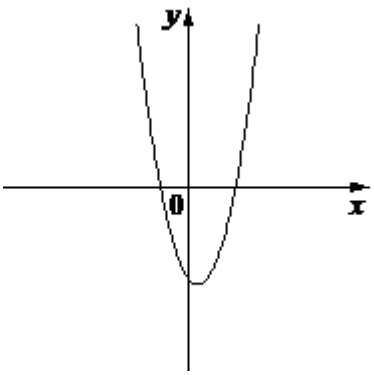

В таблице под каждой буквой укажите соответствующий номер.

А	Б	В

6. На рисунках изображены графики функций вида $y = ax^2 + bx + c$. Установите соответствие между знаками коэффициентов a и c и графиками функций.

КОЭФФИЦИЕНТЫ

А) $a > 0, c > 0$ Б) $a < 0, c > 0$ В) $a > 0, c < 0$

ГРАФИКИ

1)

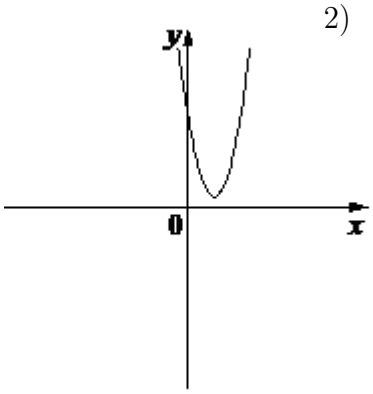

2)

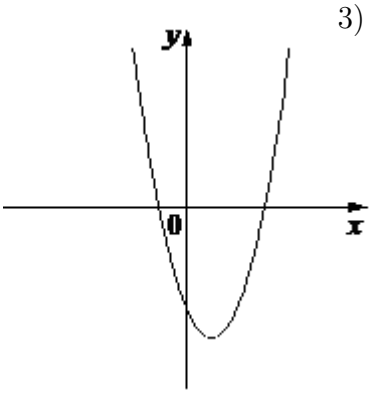

3)

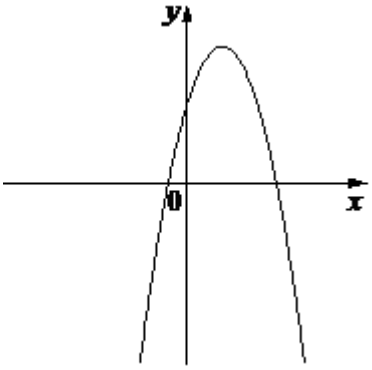

В таблице под каждой буквой укажите соответствующий номер.

А	Б	В

7. На рисунках изображены графики функций вида $y = ax^2 + bx + c$. Установите соответствие между знаками коэффициентов a и c и графиками функций.

КОЭФФИЦИЕНТЫ

А) $a > 0, c < 0$ Б) $a > 0, c > 0$ В) $a < 0, c > 0$

ГРАФИКИ

1) 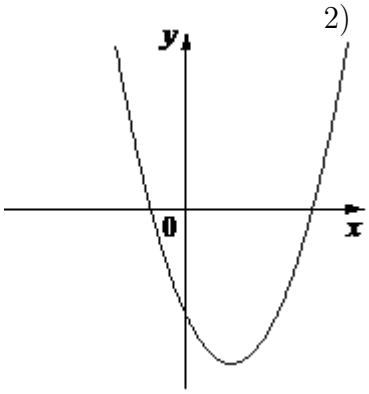

2) 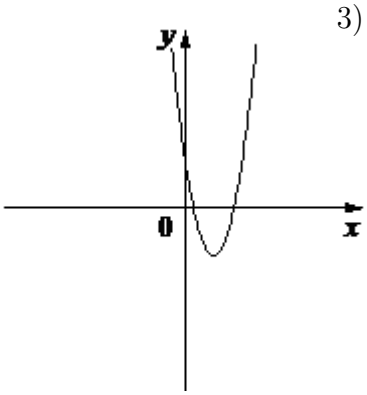

3) 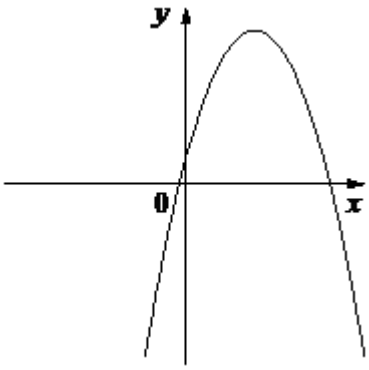

В таблице под каждой буквой укажите соответствующий номер.

А	Б	В

8. На рисунках изображены графики функций вида $y = ax^2 + bx + c$. Установите соответствие между знаками коэффициентов a и c и графиками функций.

КОЭФФИЦИЕНТЫ

А) $a > 0, c < 0$ Б) $a < 0, c > 0$ В) $a > 0, c > 0$

ГРАФИКИ

1) 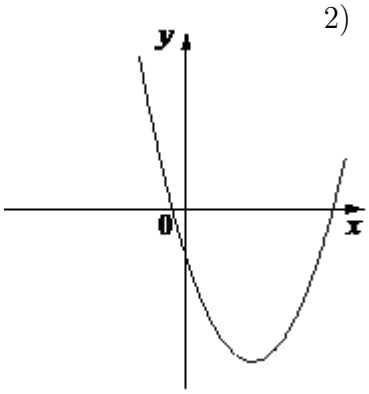

2) 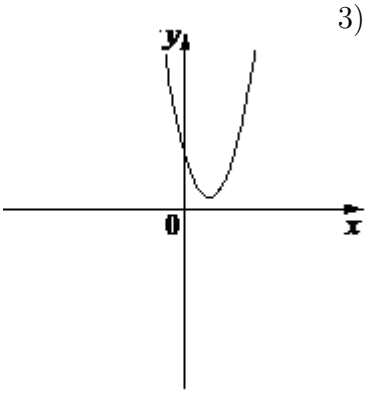

3) 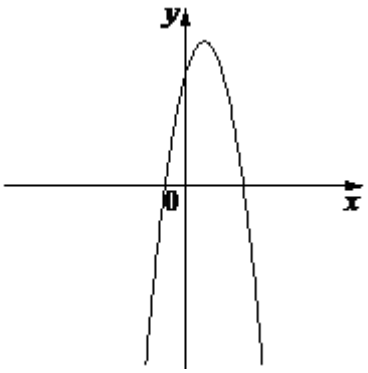

В таблице под каждой буквой укажите соответствующий номер.

А	Б	В

9. На рисунках изображены графики функций вида $y = ax^2 + bx + c$. Установите соответствие между знаками коэффициентов a и c и графиками функций.

КОЭФФИЦИЕНТЫ

А) $a > 0, c > 0$ Б) $a < 0, c > 0$ В) $a > 0, c < 0$

ГРАФИКИ

1)

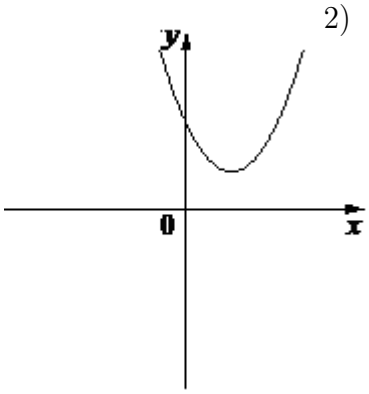

2)

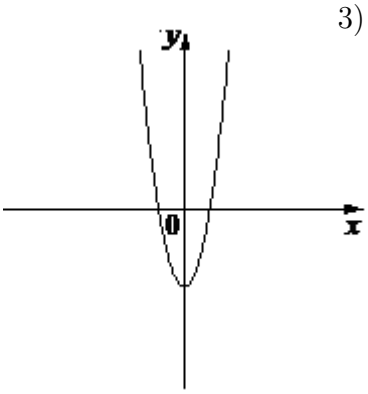

3)

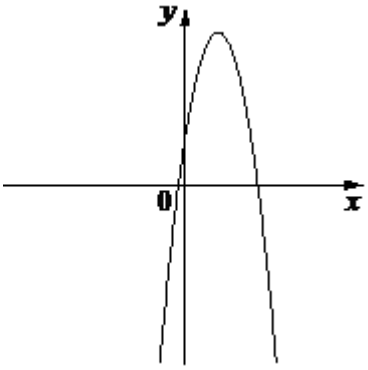

В таблице под каждой буквой укажите соответствующий номер.

А	Б	В

10. На рисунках изображены графики функций вида $y = ax^2 + bx + c$. Установите соответствие между знаками коэффициентов a и c и графиками функций.

КОЭФФИЦИЕНТЫ

А) $a < 0, c > 0$ Б) $a > 0, c > 0$ В) $a > 0, c < 0$

ГРАФИКИ

1) 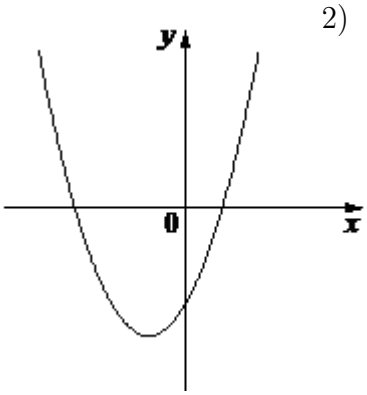

2) 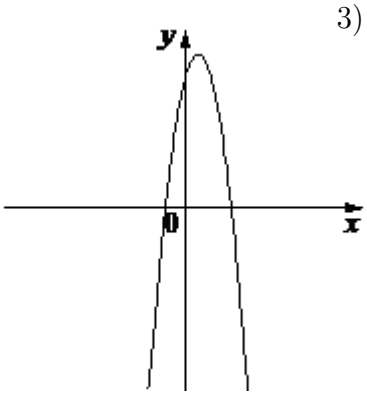

3) 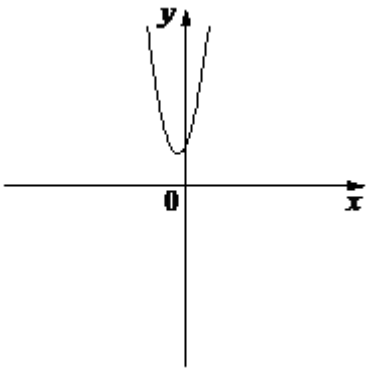

В таблице под каждой буквой укажите соответствующий номер.

А	Б	В

11. На рисунках изображены графики функций вида $y = ax^2 + bx + c$. Установите соответствие между знаками коэффициентов a и c и графиками функций.

КОЭФФИЦИЕНТЫ

А) $a > 0, c < 0$ Б) $a > 0, c > 0$ В) $a < 0, c > 0$

ГРАФИКИ

1) 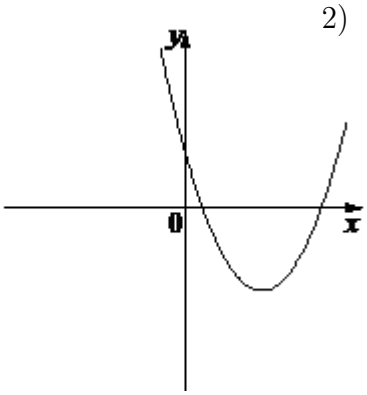

2) 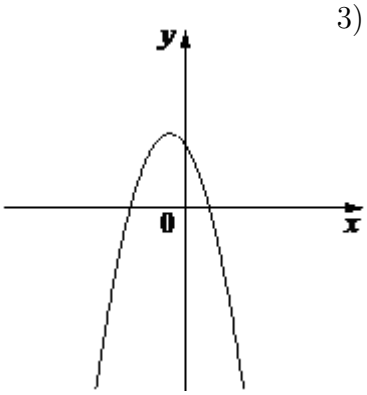

3) 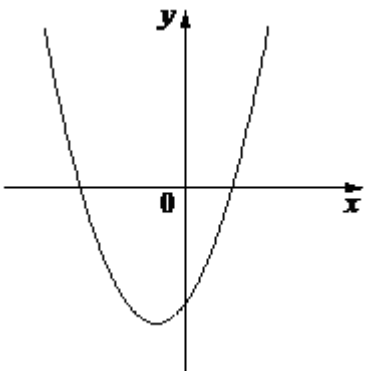

В таблице под каждой буквой укажите соответствующий номер.

А	Б	В

12. На рисунках изображены графики функций вида $y = ax^2 + bx + c$. Установите соответствие между знаками коэффициентов a и c и графиками функций.

КОЭФФИЦИЕНТЫ

А) $a < 0, c > 0$ Б) $a > 0, c > 0$ В) $a > 0, c < 0$

ГРАФИКИ

1)

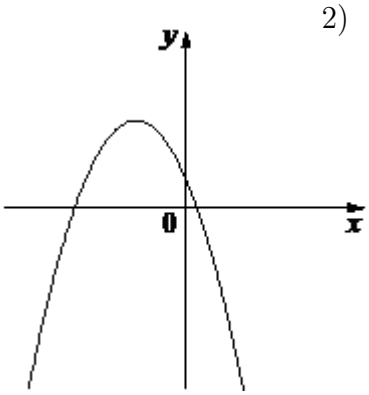

2)

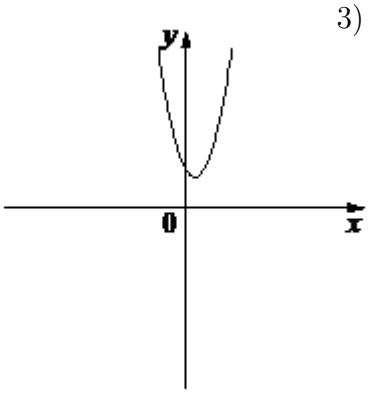

3)

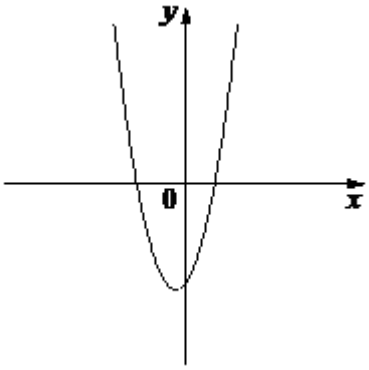

В таблице под каждой буквой укажите соответствующий номер.

А	Б	В

13. На рисунках изображены графики функций вида $y = ax^2 + bx + c$. Установите соответствие между знаками коэффициентов a и c и графиками функций.

КОЭФФИЦИЕНТЫ

А) $a > 0, c > 0$ Б) $a < 0, c > 0$ В) $a > 0, c < 0$

ГРАФИКИ

1)

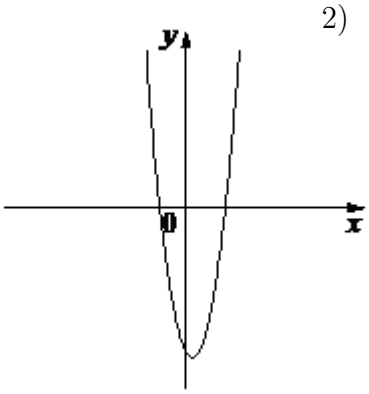

2)

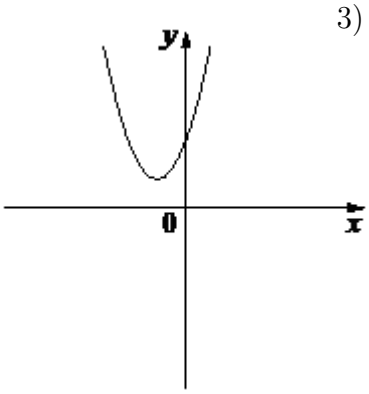

3)

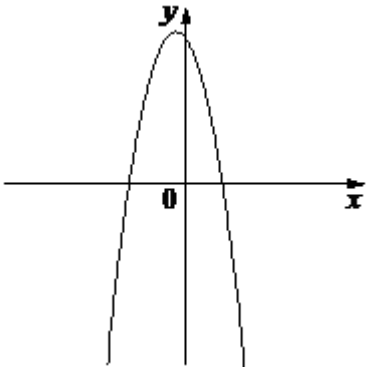

В таблице под каждой буквой укажите соответствующий номер.

А	Б	В

14. На рисунках изображены графики функций вида $y = ax^2 + bx + c$. Установите соответствие между графиками и знаками коэффициентов a и c.

ГРАФИКИ

А)

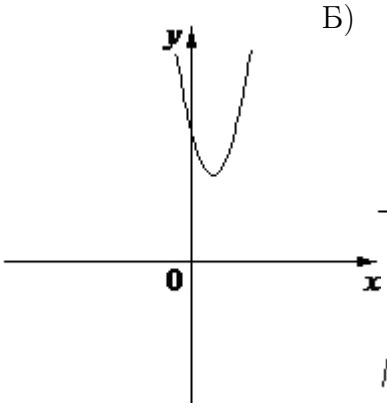

Б)

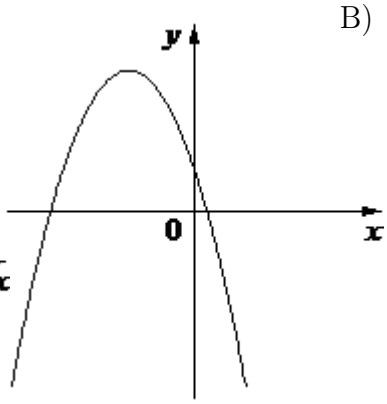

В)

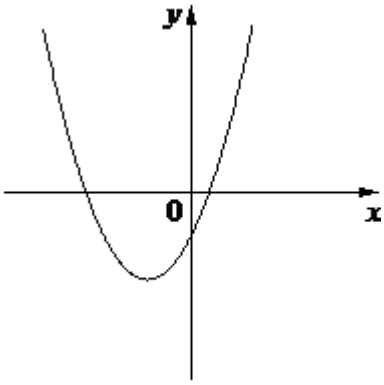

КОЭФФИЦИЕНТЫ

1) $a > 0, c < 0$ 2) $a < 0, c > 0$ 3) $a > 0, c > 0$

В таблице под каждой буквой укажите соответствующий номер.

А	Б	В

15. На рисунках изображены графики функций вида $y = ax^2 + bx + c$. Установите соответствие между графиками и знаками коэффициентов a и c.

ГРАФИКИ

А)

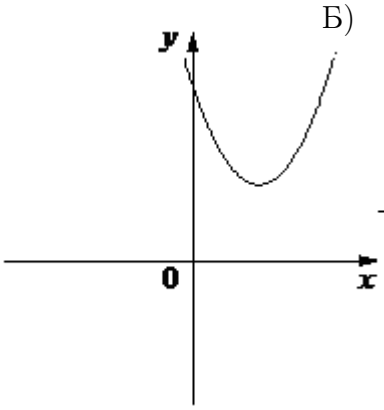

Б)

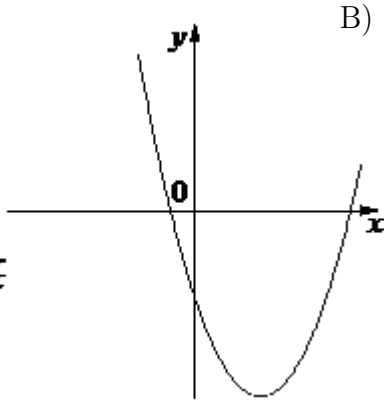

В)

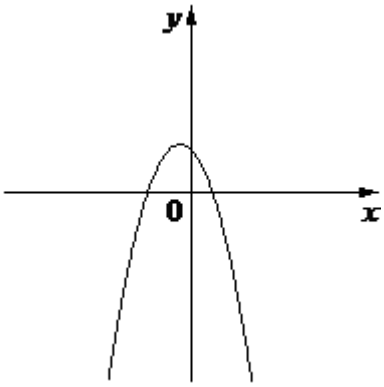

КОЭФФИЦИЕНТЫ

1) $a > 0, c > 0$ 2) $a > 0, c < 0$ 3) $a < 0, c > 0$

В таблице под каждой буквой укажите соответствующий номер.

А	Б	В

16. На рисунках изображены графики функций вида $y = ax^2 + bx + c$. Установите соответствие между графиками и знаками коэффициентов a и c.

ГРАФИКИ

А)

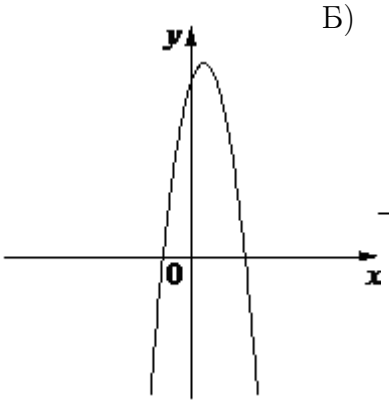

Б)

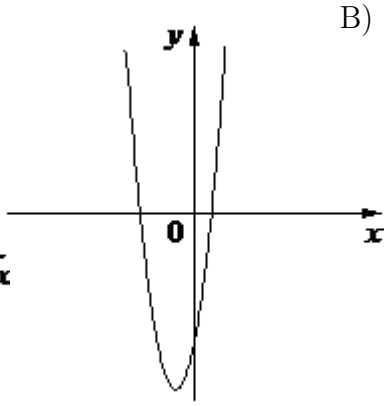

В)

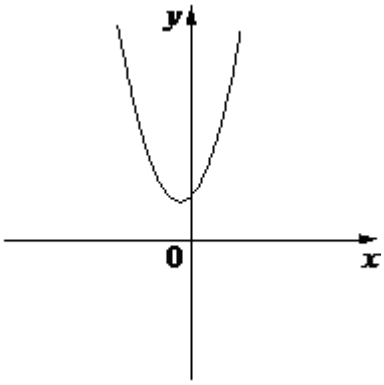

КОЭФФИЦИЕНТЫ

1) $a > 0, c < 0$ 2) $a > 0, c > 0$ 3) $a < 0, c > 0$

В таблице под каждой буквой укажите соответствующий номер.

А	Б	В

17. На рисунках изображены графики функций вида $y = ax^2 + bx + c$. Установите соответствие между графиками и знаками коэффициентов a и c.

ГРАФИКИ

А)

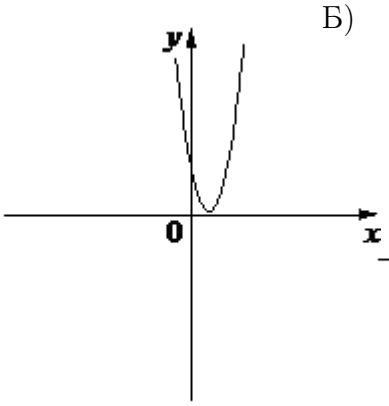

Б)

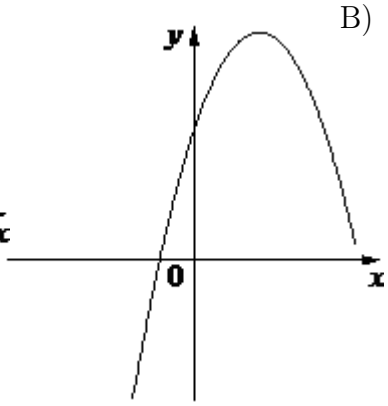

В)

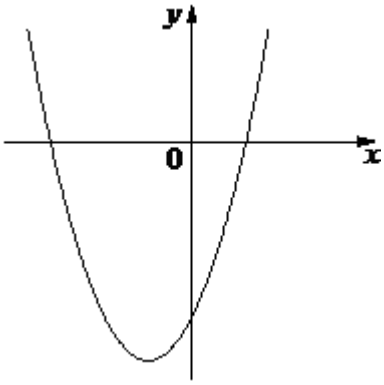

КОЭФФИЦИЕНТЫ

1) $a < 0, c > 0$ 2) $a > 0, c > 0$ 3) $a > 0, c < 0$

В таблице под каждой буквой укажите соответствующий номер.

А	Б	В

18. На рисунках изображены графики функций вида $y = ax^2 + bx + c$. Установите соответствие между графиками и знаками коэффициентов a и c.

ГРАФИКИ

А)

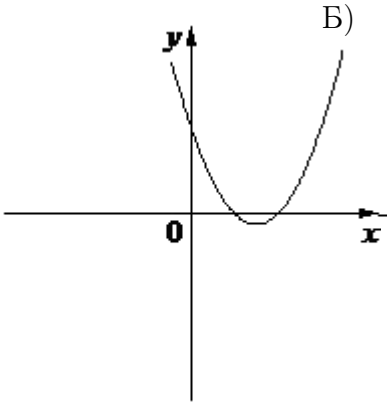

Б)

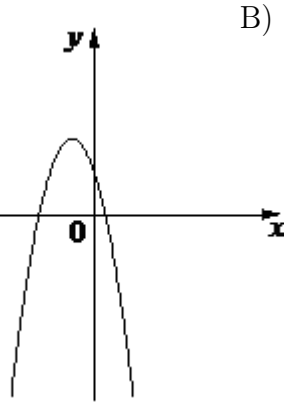

В)

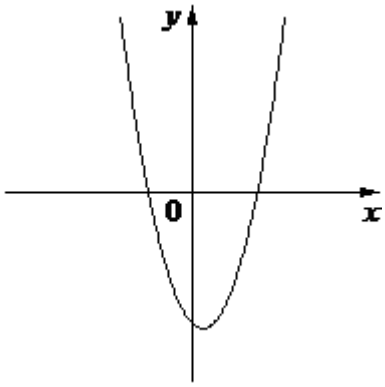

КОЭФФИЦИЕНТЫ

1) $a < 0, c > 0$ 2) $a > 0, c > 0$ 3) $a > 0, c < 0$

В таблице под каждой буквой укажите соответствующий номер.

А	Б	В

19. На рисунках изображены графики функций вида $y = ax^2 + bx + c$. Установите соответствие между графиками и знаками коэффициентов a и c.

ГРАФИКИ

А)

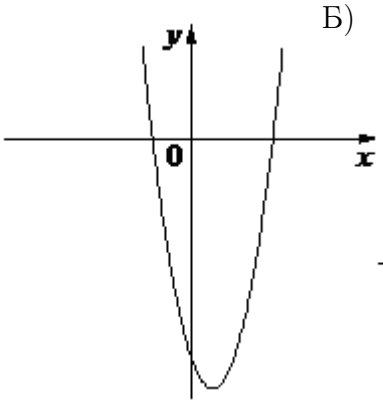

Б)

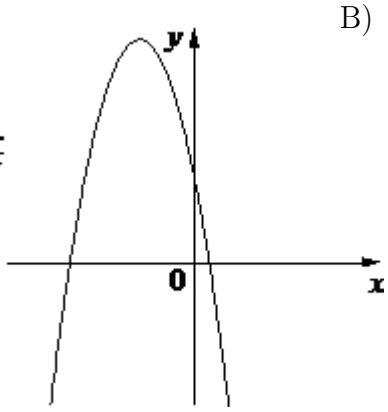

В)

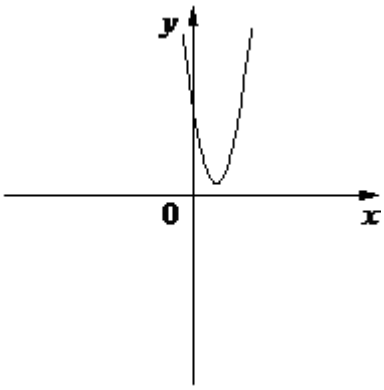

КОЭФФИЦИЕНТЫ

1) $a > 0, c > 0$ 2) $a < 0, c > 0$ 3) $a > 0, c < 0$

В таблице под каждой буквой укажите соответствующий номер.

А	Б	В

20. На рисунках изображены графики функций вида $y = ax^2 + bx + c$. Установите соответствие между графиками и знаками коэффициентов a и c.

ГРАФИКИ

А)

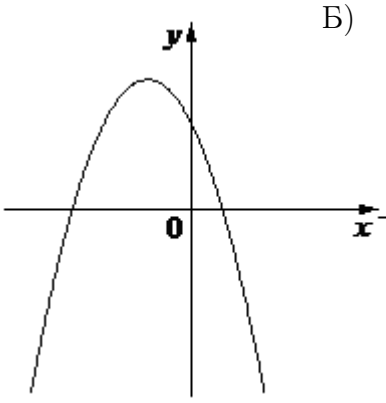

Б)

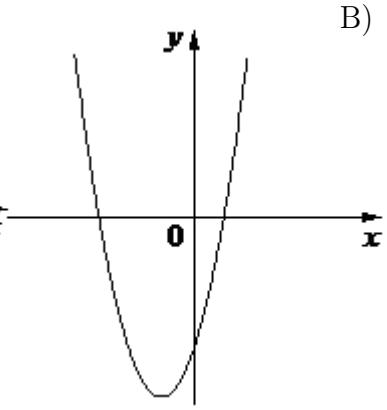

В)

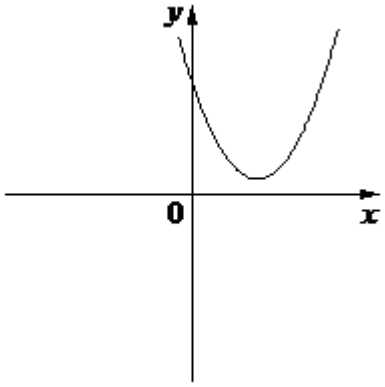

КОЭФФИЦИЕНТЫ

1) $a > 0, c < 0$ 2) $a > 0, c > 0$ 3) $a < 0, c > 0$

В таблице под каждой буквой укажите соответствующий номер.

А	Б	В

21. На рисунках изображены графики функций вида $y = ax^2 + bx + c$. Установите соответствие между графиками и знаками коэффициентов a и c.

ГРАФИКИ

А)

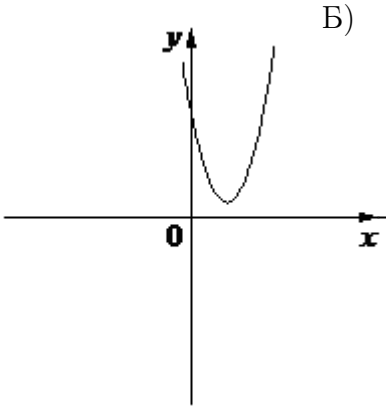

Б)

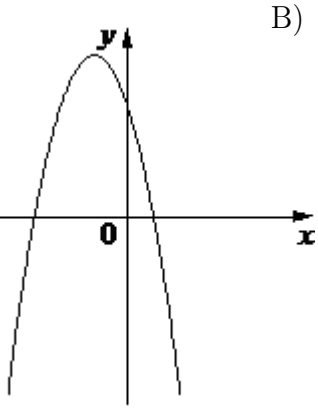

В)

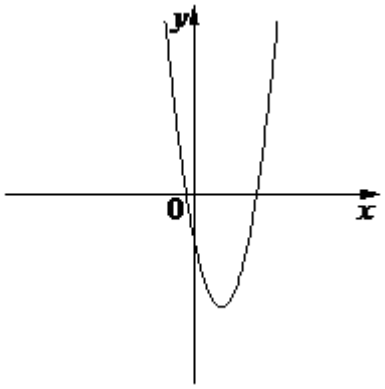

КОЭФФИЦИЕНТЫ

1) $a < 0, c > 0$ 2) $a > 0, c < 0$ 3) $a > 0, c > 0$

В таблице под каждой буквой укажите соответствующий номер.

А	Б	В

22. На рисунках изображены графики функций вида $y = ax^2 + bx + c$. Установите соответствие между графиками и знаками коэффициентов a и c.

ГРАФИКИ

А)

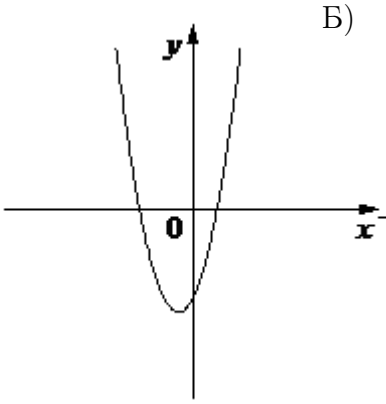

Б)

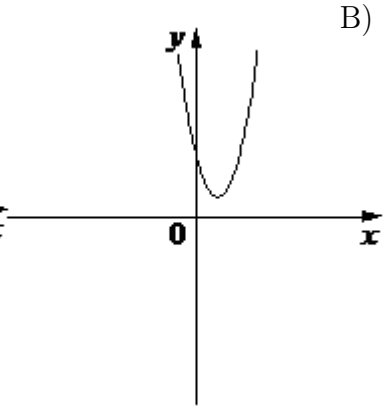

В)

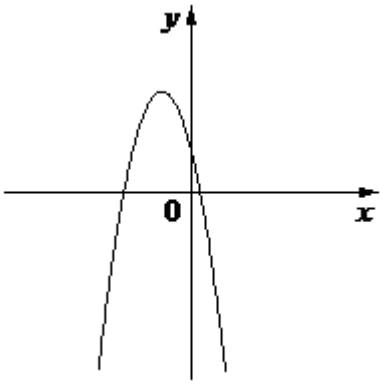

КОЭФФИЦИЕНТЫ

1) $a > 0, c < 0$ 2) $a < 0, c > 0$ 3) $a > 0, c > 0$

В таблице под каждой буквой укажите соответствующий номер.

А	Б	В

23. На рисунках изображены графики функций вида $y = ax^2 + bx + c$. Установите соответствие между графиками и знаками коэффициентов a и c.

ГРАФИКИ

А) Б) В)

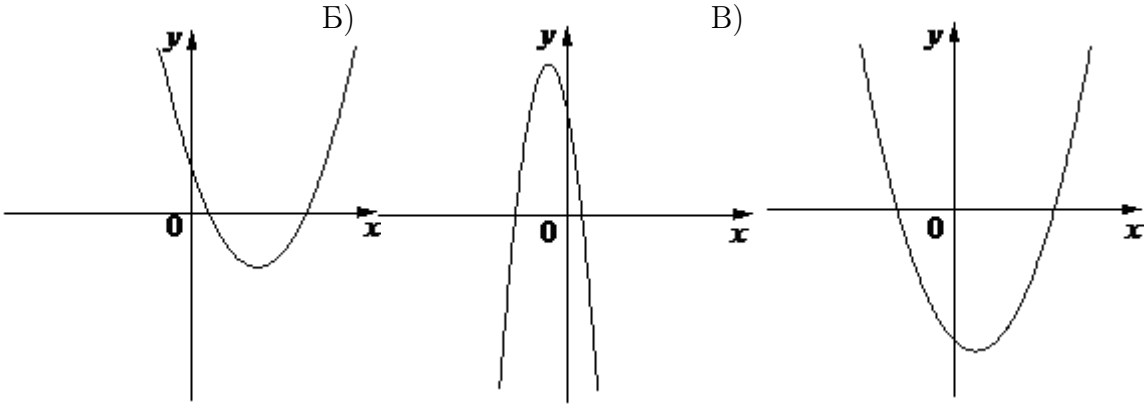

КОЭФФИЦИЕНТЫ

1) $a < 0, c > 0$ 2) $a > 0, c < 0$ 3) $a > 0, c > 0$

В таблице под каждой буквой укажите соответствующий номер.

А	Б	В

24. На рисунках изображены графики функций вида $y = ax^2 + bx + c$. Установите соответствие между графиками и знаками коэффициентов a и c.

ГРАФИКИ

А) Б) В)

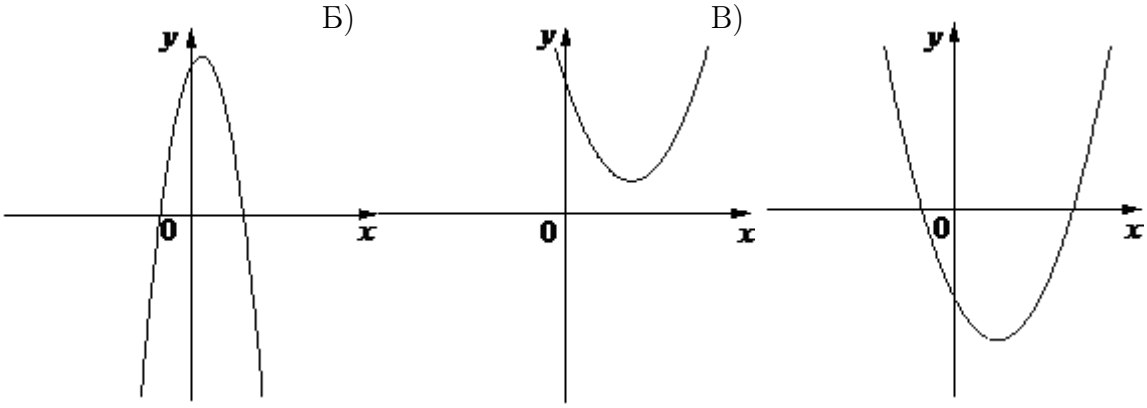

КОЭФФИЦИЕНТЫ

1) $a < 0, c > 0$ 2) $a > 0, c < 0$ 3) $a > 0, c > 0$

В таблице под каждой буквой укажите соответствующий номер.

А	Б	В

25. На рисунках изображены графики функций вида $y = ax^2 + bx + c$. Установите соответствие между графиками и знаками коэффициентов a и c.

ГРАФИКИ

А)

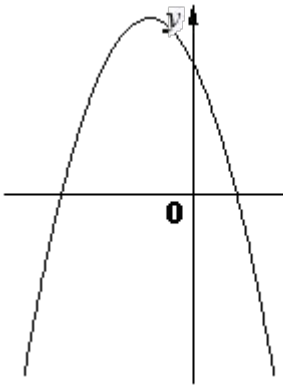

Б)

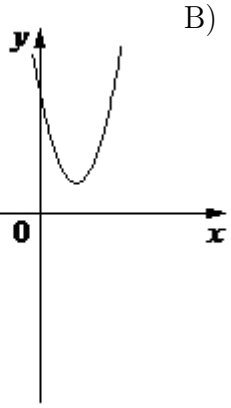

В)

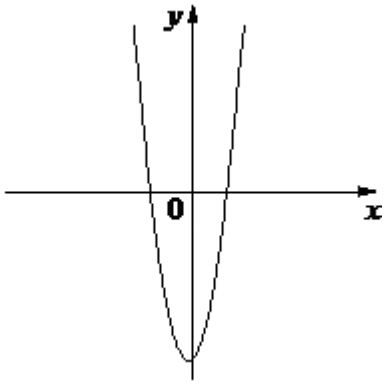

КОЭФФИЦИЕНТЫ

1) $a > 0, c < 0$ 2) $a < 0, c > 0$ 3) $a > 0, c > 0$

В таблице под каждой буквой укажите соответствующий номер.

А	Б	В

26. На рисунках изображены графики функций вида $y = ax^2 + bx + c$. Установите соответствие между графиками и знаками коэффициентов a и c.

ГРАФИКИ

А)

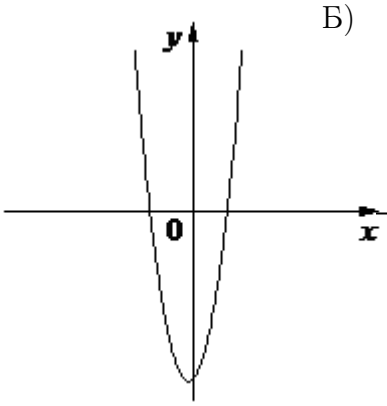

Б)

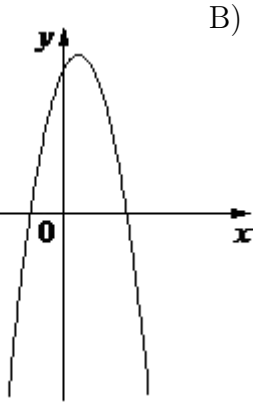

В)

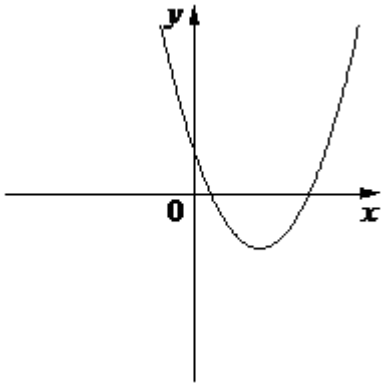

КОЭФФИЦИЕНТЫ

1) $a > 0, c > 0$ 2) $a > 0, c < 0$ 3) $a < 0, c > 0$

В таблице под каждой буквой укажите соответствующий номер.

А	Б	В

Задача 6

1. Установите соответствие между графиками функций и формулами, которые их задают.

ГРАФИКИ

А)

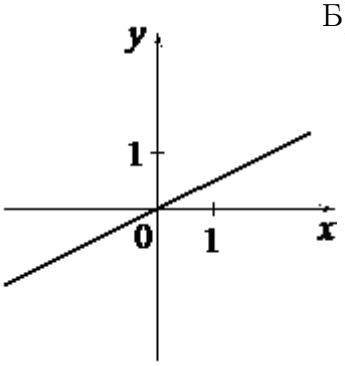

Б)

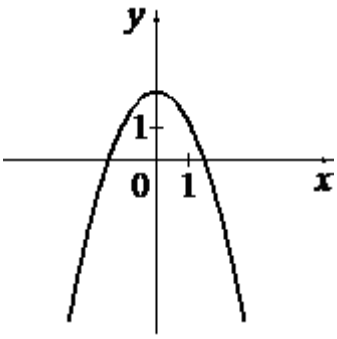

В)

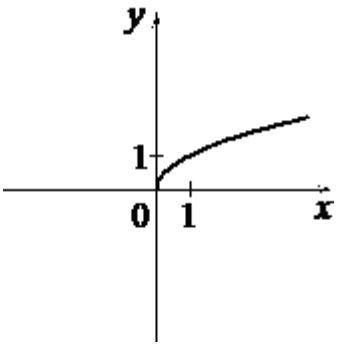

ФОРМУЛЫ

1) $y = \frac{1}{2}x$ 2) $y = 2 - x^2$ 3) $y = \sqrt{x}$

В таблице под каждой буквой укажите соответствующий номер.

А	Б	В

2. Установите соответствие между графиками функций и формулами, которые их задают.

ГРАФИКИ

А)

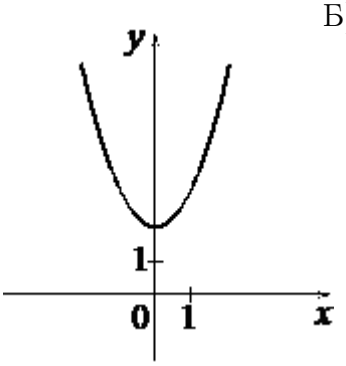

Б)

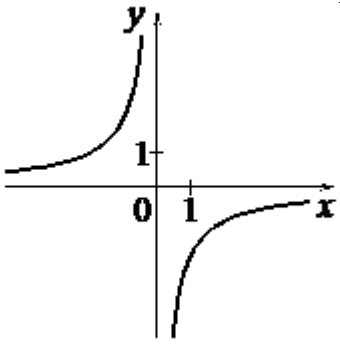

В)

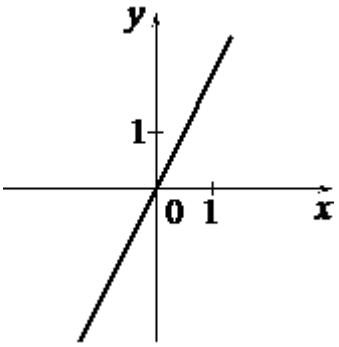

ФОРМУЛЫ

1) $y = x^2 + 2$ 2) $y = -\frac{2}{x}$ 3) $y = 2x$

В таблице под каждой буквой укажите соответствующий номер.

А	Б	В

3. Установите соответствие между графиками функций и формулами, которые их задают.

ГРАФИКИ

А)

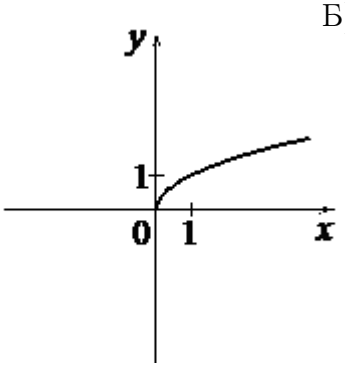

Б)

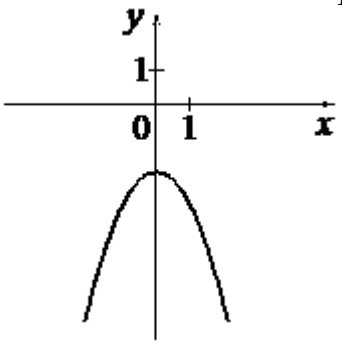

В)

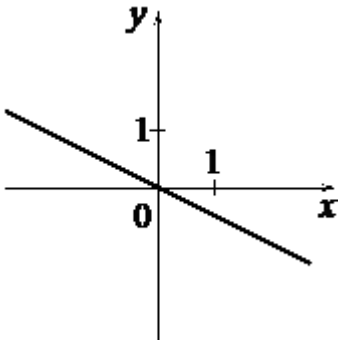

ФОРМУЛЫ

1) $y = -\frac{1}{2}x$ 2) $y = -x^2 - 2$ 3) $y = \sqrt{x}$

В таблице под каждой буквой укажите соответствующий номер.

А	Б	В

4. Установите соответствие между графиками функций и формулами, которые их задают.

ГРАФИКИ

А)

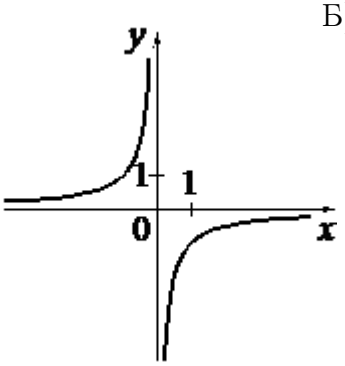

Б)

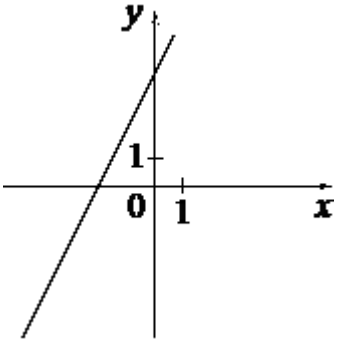

В)

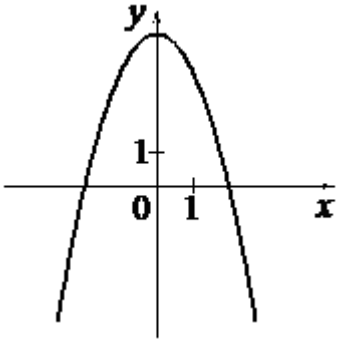

ФОРМУЛЫ

1) $y = -\dfrac{1}{x}$ 2) $y = 4 - x^2$ 3) $y = 2x + 4$

В таблице под каждой буквой укажите соответствующий номер.

А	Б	В

5. Установите соответствие между графиками функций и формулами, которые их задают.

ГРАФИКИ

А)

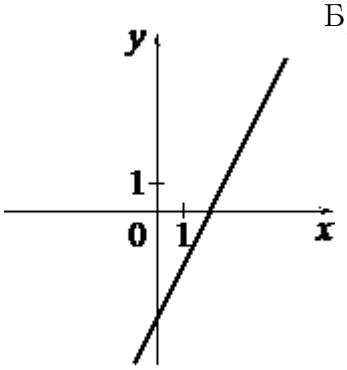

Б)

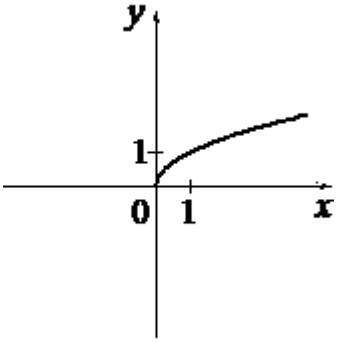

В)

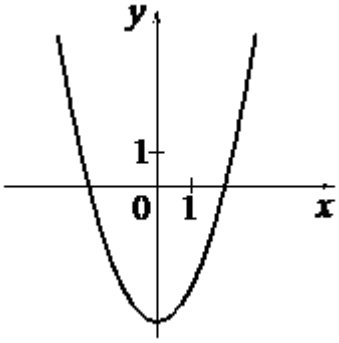

ФОРМУЛЫ

1) $y = \sqrt{x}$ 2) $y = 2x - 4$ 3) $y = x^2 - 4$

В таблице под каждой буквой укажите соответствующий номер.

А	Б	В

6. Установите соответствие между графиками функций и формулами, которые их задают.

ГРАФИКИ

А)

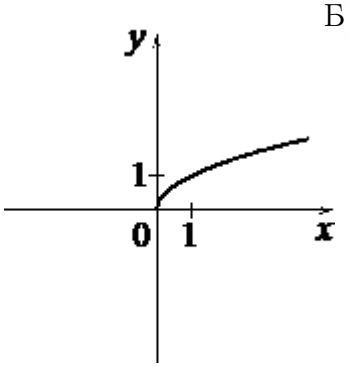

Б)

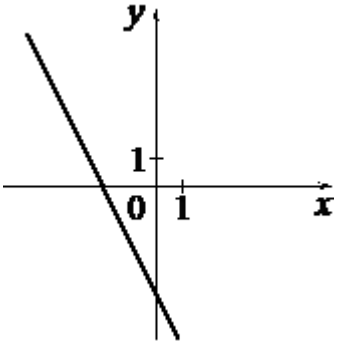

В)

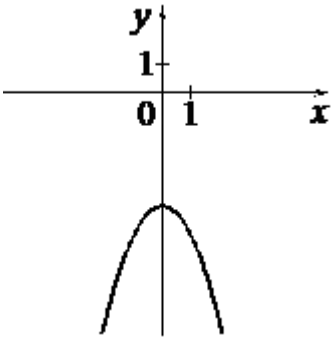

ФОРМУЛЫ

1) $y = -x^2 - 4$ 2) $y = -2x - 4$ 3) $y = \sqrt{x}$

В таблице под каждой буквой укажите соответствующий номер.

А	Б	В

7. Установите соответствие между графиками функций и формулами, которые их задают.

ГРАФИКИ

А)

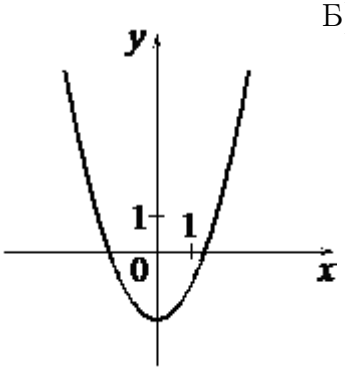

Б)

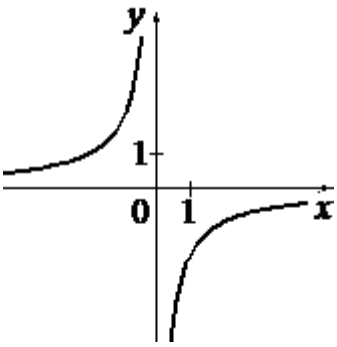

В)

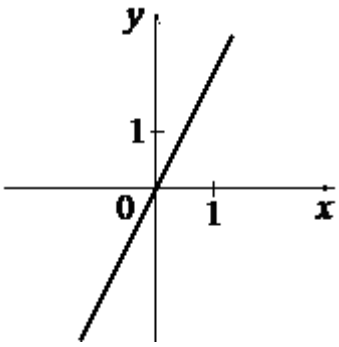

ФОРМУЛЫ

1) $y = -\dfrac{2}{x}$ 2) $y = 2x$ 3) $y = x^2 - 2$

В таблице под каждой буквой укажите соответствующий номер.

А	Б	В

8. Установите соответствие между графиками функций и формулами, которые их задают.

ГРАФИКИ

А)

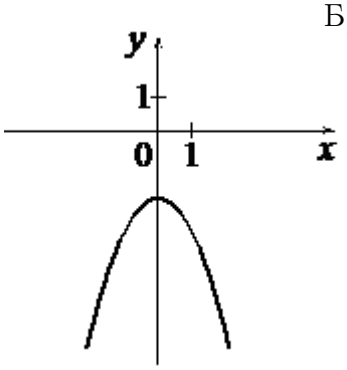

Б)

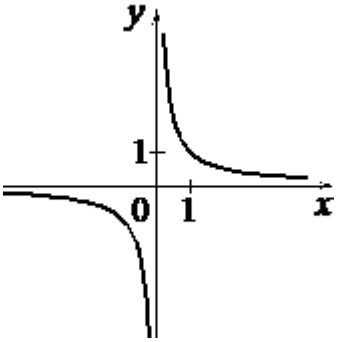

В)

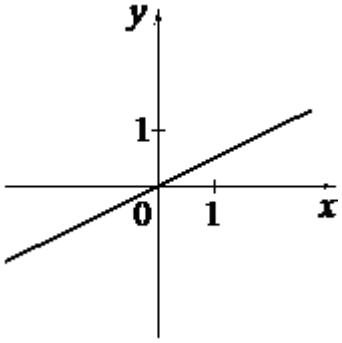

ФОРМУЛЫ

1) $y = \frac{1}{x}$ 2) $y = -x^2 - 2$ 3) $y = \frac{1}{2}x$

В таблице под каждой буквой укажите соответствующий номер.

А	Б	В

9. Установите соответствие между графиками функций и формулами, которые их задают.

ГРАФИКИ

А)

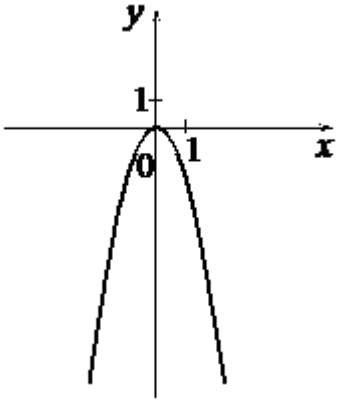

Б)

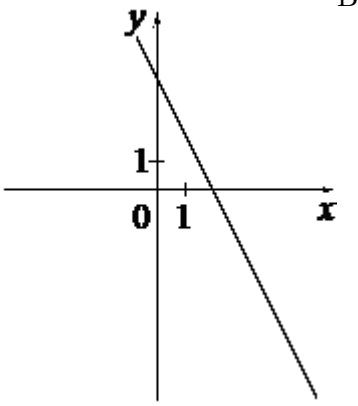

В)

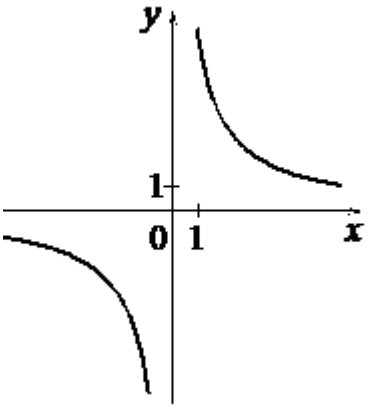

ФОРМУЛЫ

1) $y = \frac{6}{x}$ 2) $y = -2x + 4$ 3) $y = -2x^2$

В таблице под каждой буквой укажите соответствующий номер.

А	Б	В

10. Установите соответствие между графиками функций и формулами, которые их задают.

ГРАФИКИ

А)

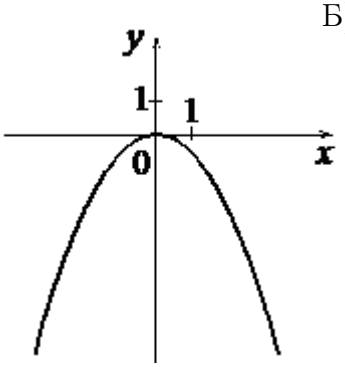

Б)

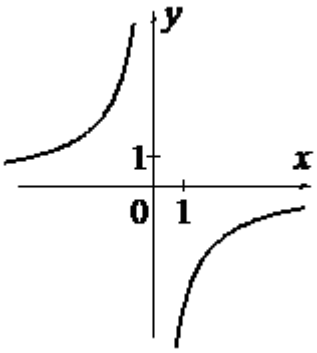

В)

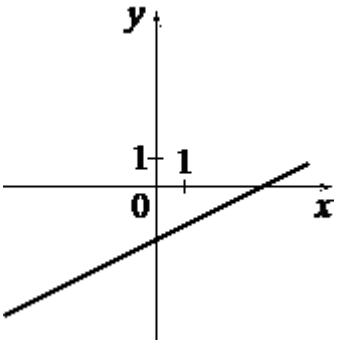

ФОРМУЛЫ

1) $y = -\dfrac{6}{x}$ 2) $y = -\dfrac{1}{2}x^2$ 3) $y = \dfrac{1}{2}x - 2$

В таблице под каждой буквой укажите соответствующий номер.

А	Б	В

Задача 7

1. Установите соответствие между графиками функций и формулами, которые их задают.

ГРАФИКИ

А)

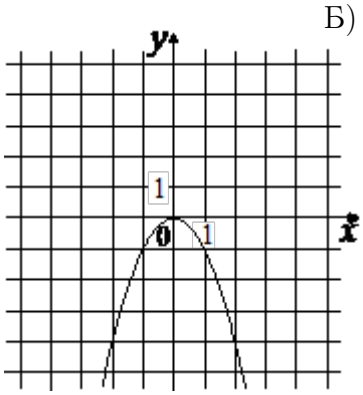

Б)

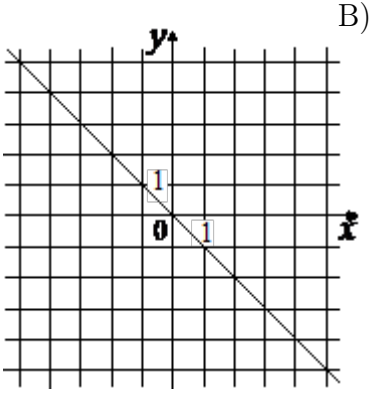

В)

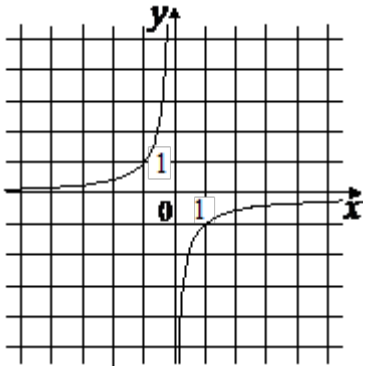

ФОРМУЛЫ

1) $y = -x^2$ 2) $y = -x$ 3) $y = -\dfrac{1}{x}$

В таблице под каждой буквой укажите соответствующий номер.

А	Б	В

2. Установите соответствие между графиками функций и формулами, которые их задают.

ГРАФИКИ

А)

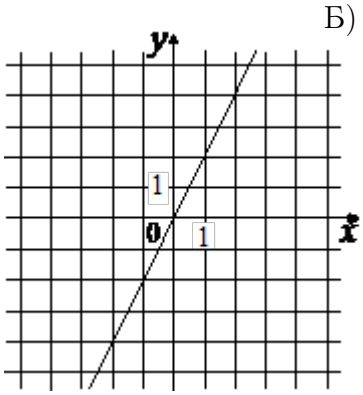

Б)

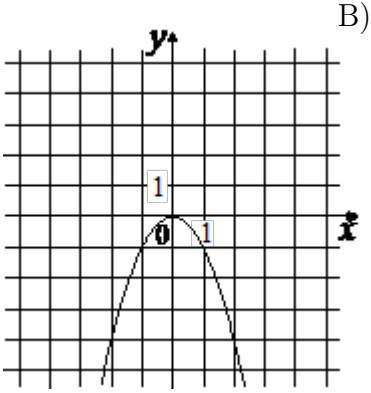

В)

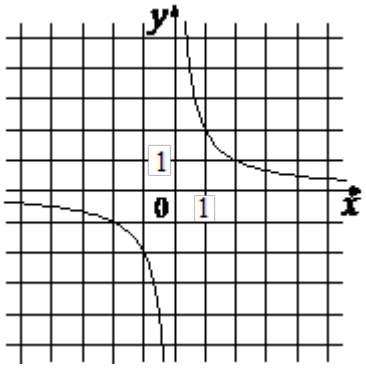

ФОРМУЛЫ

1) $y = \dfrac{2}{x}$ 2) $y = -x^2$ 3) $y = 2x$

В таблице под каждой буквой укажите соответствующий номер.

А	Б	В

3. Установите соответствие между графиками функций и формулами, которые их задают.

ГРАФИКИ

А) Б) В)

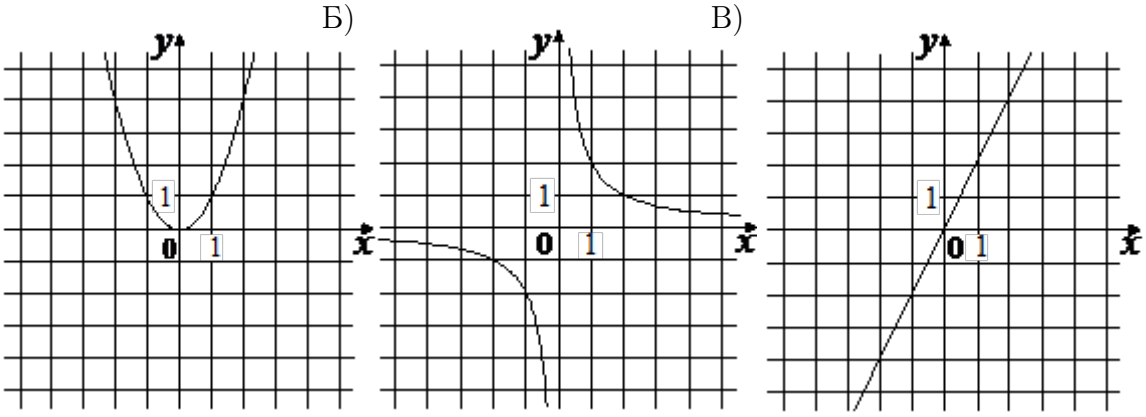

ФОРМУЛЫ

1) $y = \dfrac{2}{x}$ 2) $y = 2x$ 3) $y = x^2$

В таблице под каждой буквой укажите соответствующий номер.

А	Б	В

4. Установите соответствие между функциями и их графиками.

ФУНКЦИИ

А) $y = -x^2 - x + 5$ Б) $y = -\frac{3}{4}x - 1$ В) $y = -\frac{12}{x}$

ГРАФИКИ

1) 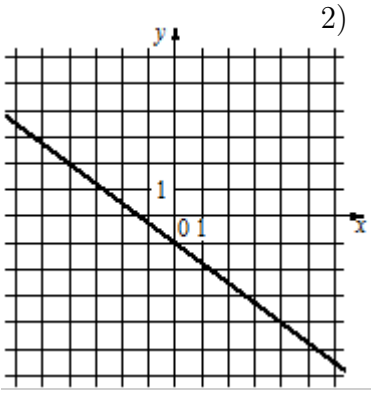

2) 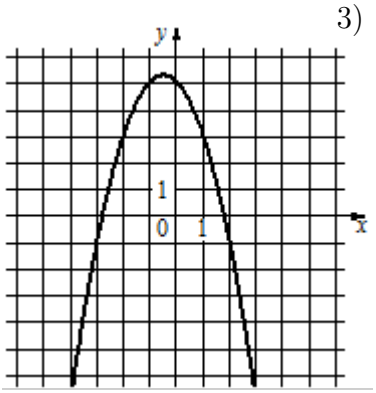

3) 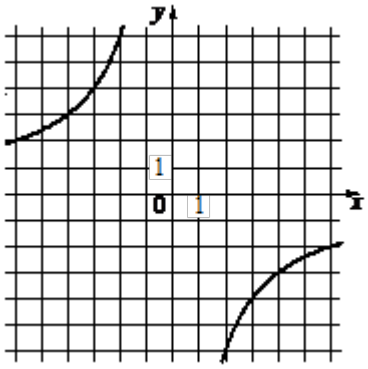

В таблице под каждой буквой укажите соответствующий номер.

А	Б	В

5. Установите соответствие между функциями и их графиками.

ФУНКЦИИ

А) $y = \frac{1}{x}$ Б) $y = x + 1$ В) $y = 2x^2 + 14x + 24$

ГРАФИКИ

1) 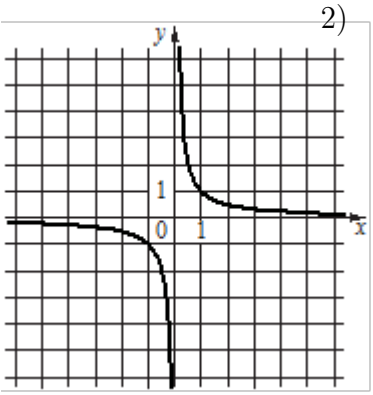

2) 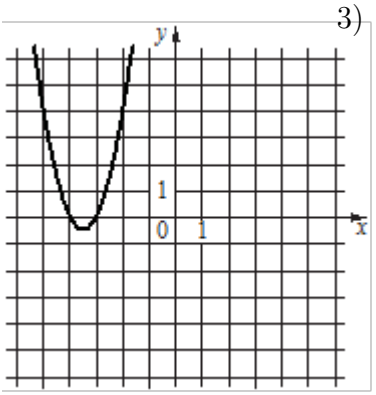

3) 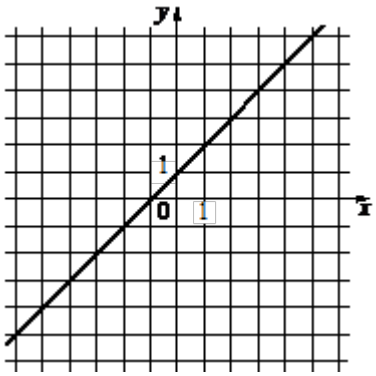

В таблице под каждой буквой укажите соответствующий номер.

А	Б	В

6. Установите соответствие между функциями и их графиками.

ФУНКЦИИ

А) $y = -\frac{1}{5}x - 5$ Б) $y = -x^2 + 7x - 7$ В) $y = \frac{9}{x}$

ГРАФИКИ

1) 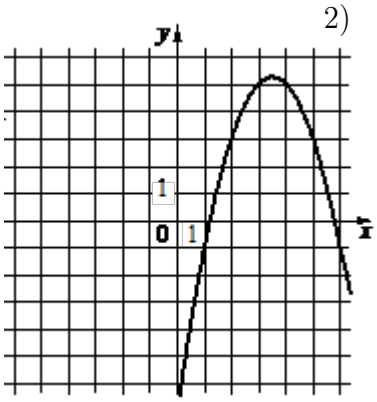

2) 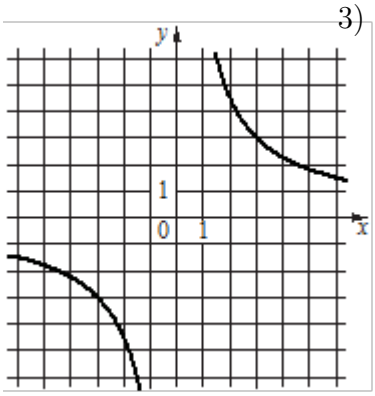

3) 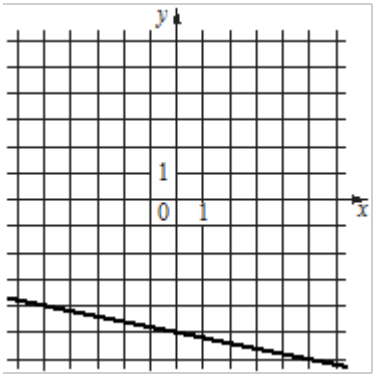

В таблице под каждой буквой укажите соответствующий номер.

А	Б	В

7. Установите соответствие между функциями и их графиками.

ФУНКЦИИ

А) $y = 2x^2 + 16x + 29$ Б) $y = \frac{5}{3}x + 6$ В) $y = -\frac{4}{x}$

ГРАФИКИ

1) 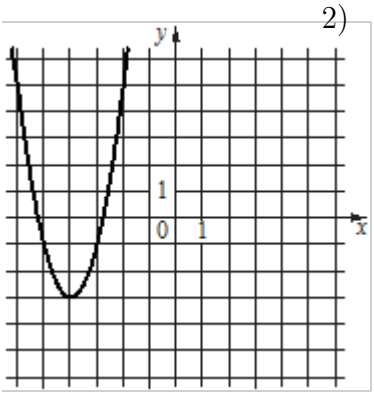

2) 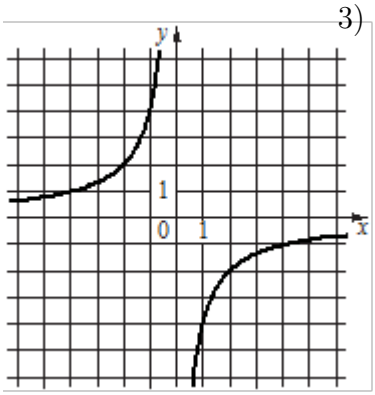

3) 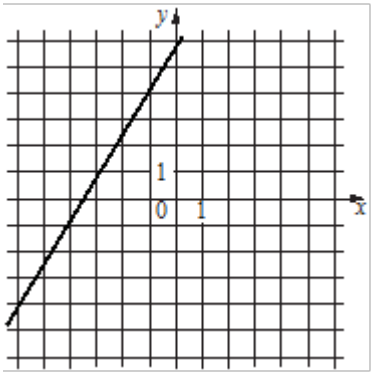

В таблице под каждой буквой укажите соответствующий номер.

А	Б	В

8. Установите соответствие между функциями и их графиками.

ФУНКЦИИ

А) $y = 4x^2 + 4x - 3$ Б) $y = \frac{1}{2}x + 6$ В) $y = \frac{1}{2x}$

ГРАФИКИ

1) 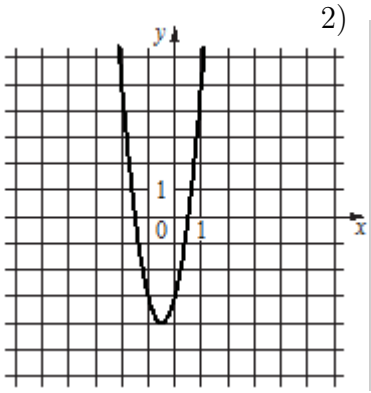

2) 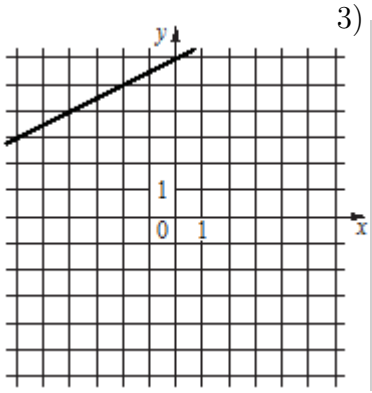

3) 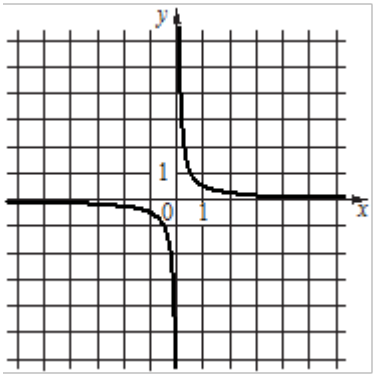

В таблице под каждой буквой укажите соответствующий номер.

А	Б	В

9. Установите соответствие между функциями и их графиками.

ФУНКЦИИ

А) $y = -2x^2 + 2x + 3$ Б) $y = -\frac{3}{x}$ В) $y = \frac{5}{3}x - 1$

ГРАФИКИ

1) 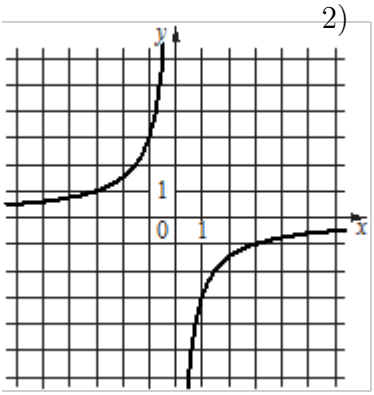

2) 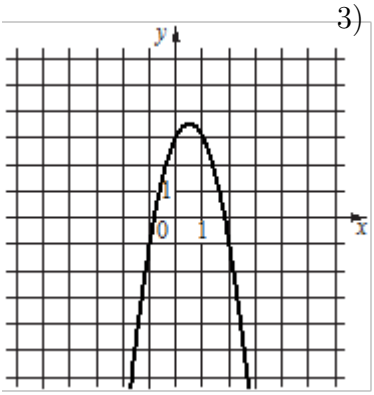

3) 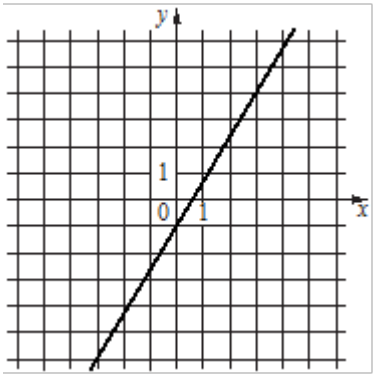

В таблице под каждой буквой укажите соответствующий номер.

А	Б	В

10. Установите соответствие между функциями и их графиками.

ФУНКЦИИ

А) $y = \frac{1}{3}x + 2$ Б) $y = -4x^2 + 20x - 22$ В) $y = \frac{1}{x}$

ГРАФИКИ

1) 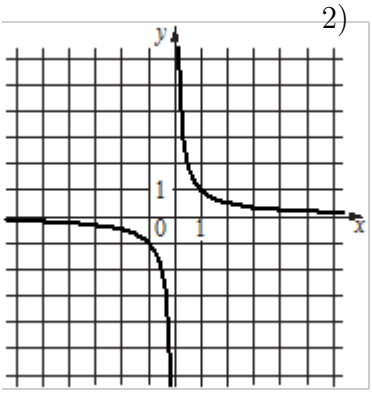

2) 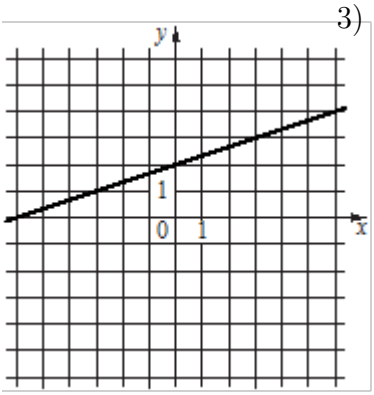

3) 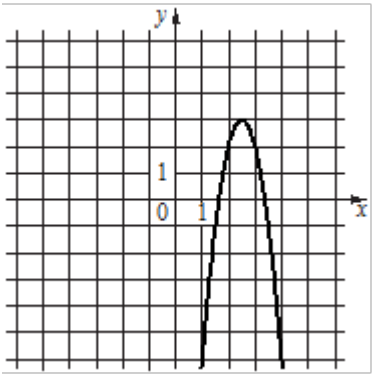

В таблице под каждой буквой укажите соответствующий номер.

А	Б	В

11. Установите соответствие между функциями и их графиками.

ФУНКЦИИ

А) $y = \frac{1}{3}x + 6$ Б) $y = \frac{1}{2x}$ В) $y = -2x^2 - 6x - 1$

ГРАФИКИ

1) 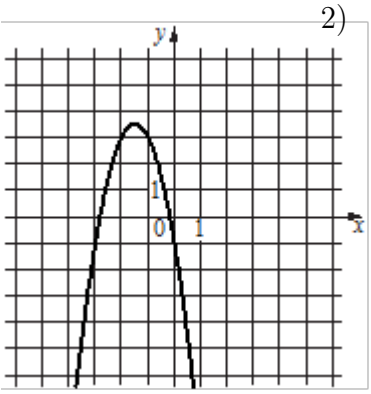

2) 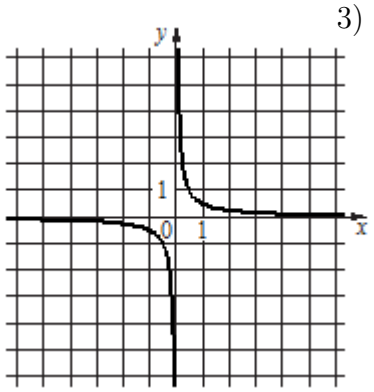

3) 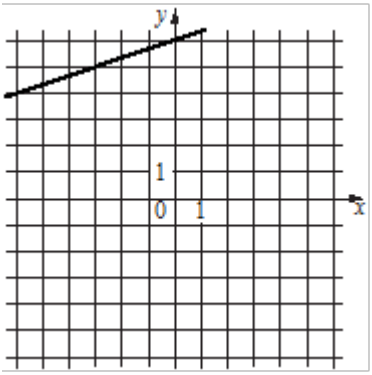

В таблице под каждой буквой укажите соответствующий номер.

А	Б	В

12. Установите соответствие между функциями и их графиками.

ФУНКЦИИ

А) $y = -x^2 - 5x - 2$ Б) $y = -\dfrac{1}{3x}$ В) $y = -\dfrac{1}{6}x - 4$

ГРАФИКИ

1) 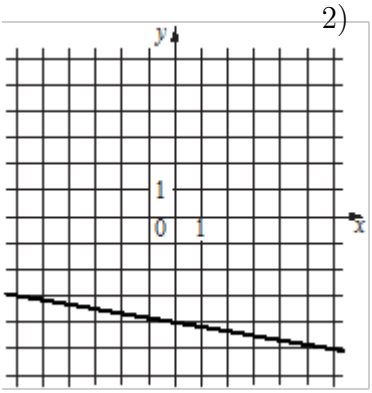

2) 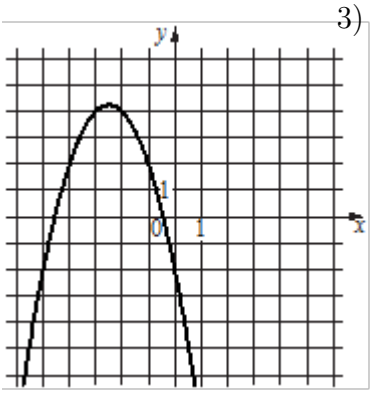

3) 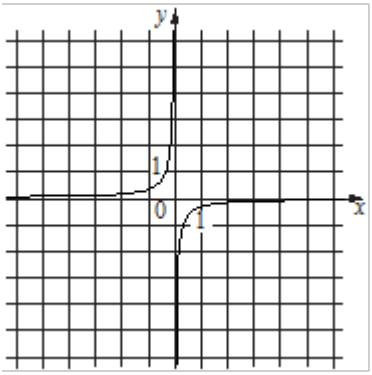

В таблице под каждой буквой укажите соответствующий номер.

А	Б	В

13. Установите соответствие между функциями и их графиками.

ФУНКЦИИ

А) $y = -\dfrac{9}{x}$ Б) $y = \dfrac{1}{3}x + 1$ В) $y = -2x^2 - 10x - 13$

ГРАФИКИ

1) 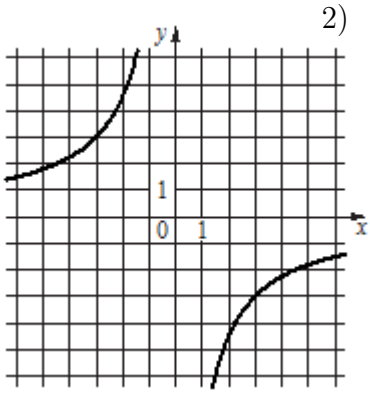

2) 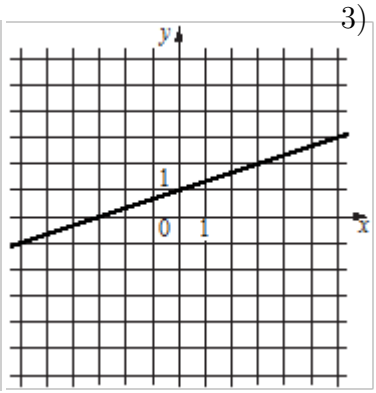

3) 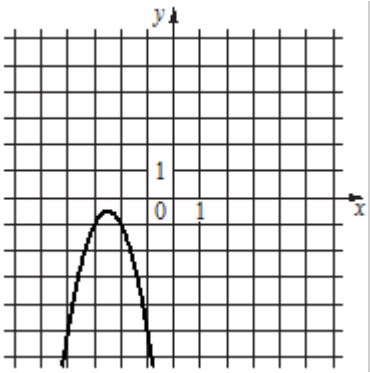

В таблице под каждой буквой укажите соответствующий номер.

А	Б	В

14. Установите соответствие между функциями и их графиками.

ФУНКЦИИ

А) $y = \frac{1}{2}x - 6$ Б) $y = x^2 - 8x + 11$ В) $y = -\frac{9}{x}$

ГРАФИКИ

1) 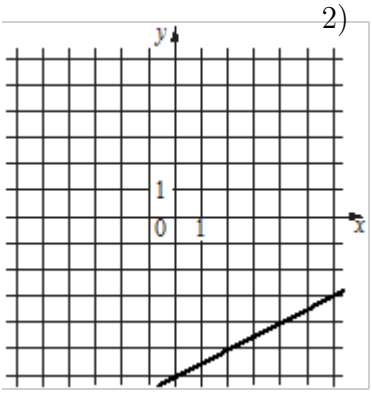

2) 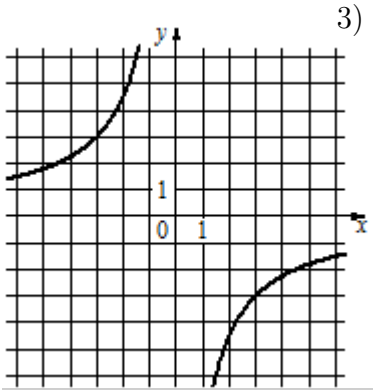

3) 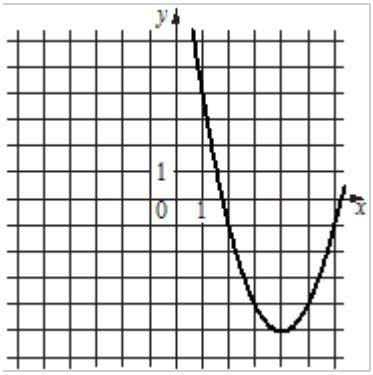

В таблице под каждой буквой укажите соответствующий номер.

А	Б	В

15. Установите соответствие между функциями и их графиками.

ФУНКЦИИ

А) $y = -2x^2 - 6x + 1$ Б) $y = \frac{1}{10x}$ В) $y = \frac{4}{5}x + 2$

ГРАФИКИ

1) 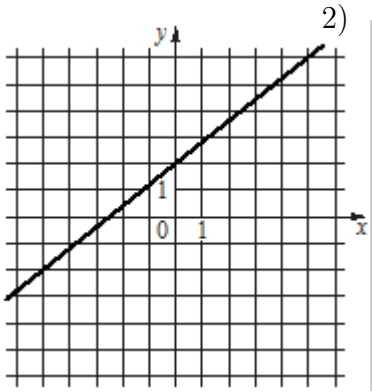

2) 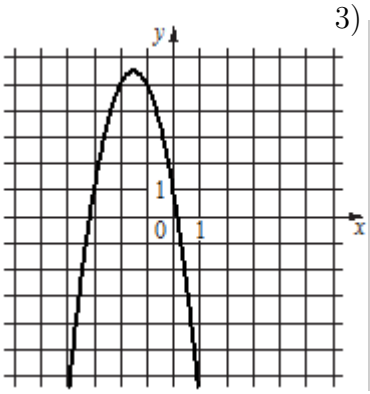

3) 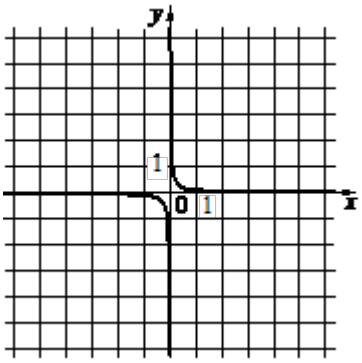

В таблице под каждой буквой укажите соответствующий номер.

А	Б	В

16. Установите соответствие между функциями и их графиками.

ФУНКЦИИ

А) $y = -3x^2 + 9x - 4$ Б) $y = -\frac{6}{x}$ В) $y = \frac{2}{3}x - 5$

ГРАФИКИ

1)

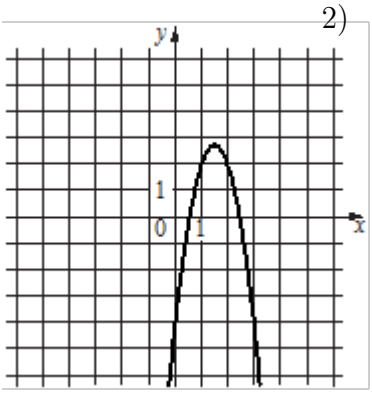

2)

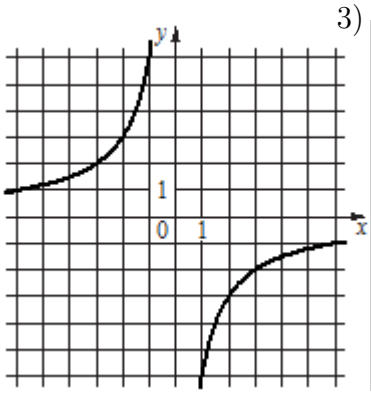

3)

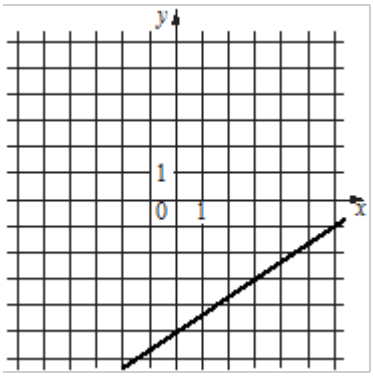

В таблице под каждой буквой укажите соответствующий номер.

А	Б	В

Ответы

Задача 1

1. 312
2. 312
3. 132
4. 321
5. 213
6. 132
7. 312
8. 312
9. 312
10. 231
11. 132
12. 231
13. 321
14. 132
15. 231
16. 321
17. 123
18. 312
19. 132
20. 321
21. 213
22. 123
23. 312

Задача 2

1. 321
2. 123
3. 231
4. 423
5. 132
6. 213
7. 321
8. 123
9. 312
10. 123
11. 213
12. 213
13. 123
14. 132
15. 312
16. 213
17. 312
18. 231
19. 132
20. 312
21. 213
22. 321
23. 123
24. 123
25. 231
26. 321

Задача 3

1. 132
2. 213
3. 132
4. 213
5. 213
6. 321
7. 213
8. 321
9. 213
10. 132
11. 321
12. 123
13. 213
14. 312
15. 312
16. 312
17. 231
18. 123
19. 312
20. 123
21. 123
22. 123
23. 123
24. 312
25. 312
26. 312

Задача 4

1. 321
2. 321
3. 312
4. 123
5. 312
6. 132
7. 213
8. 132
9. 321
10. 132
11. 132
12. 132
13. 123
14. 132
15. 123
16. 231
17. 312
18. 312
19. 231
20. 312
21. 213
22. 231
23. 321
24. 321
25. 132
26. 132

Задача 5

1. 123
2. 213
3. 312
4. 132
5. 213
6. 132
7. 123
8. 132
9. 132
10. 231
11. 312
12. 123
13. 231
14. 321
15. 123
16. 312
17. 213
18. 213
19. 321
20. 312
21. 312
22. 132
23. 312
24. 132
25. 231
26. 231

Задача 6

1. 123
2. 123
3. 321
4. 132
5. 213
6. 321
7. 312
8. 213
9. 321
10. 213

Задача 7

1. 123
2. 321
3. 312
4. 213
5. 132
6. 312
7. 132
8. 123
9. 213
10. 231
11. 321
12. 231
13. 123
14. 132
15. 231
16. 123