Содержание

Задача 1 3

Задача 2 7

Задача 3 9

Задача 4 13

Задача 5 16

Задача 6 19

Задача 7 22

Задача 8 25

Задача 9 29

Задача 10 32

Задача 11 35

Задача 12 38

Ответы 41

Задача 1

1. На клетчатой бумаге с размером клетки 1×1 отмечены три точки: A, B и C.

   Найдите расстояние от точки A до середины отрезка BC.

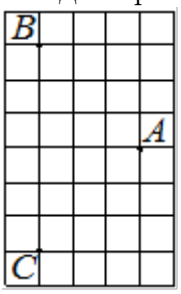

2. На клетчатой бумаге с размером клетки 1×1 отмечены три точки: A, B и C.

   Найдите расстояние от точки A до середины отрезка BC.

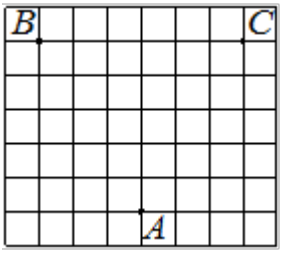

3. На клетчатой бумаге с размером клетки 1×1 отмечены три точки: A, B и C.

   Найдите расстояние от точки A до середины отрезка BC.

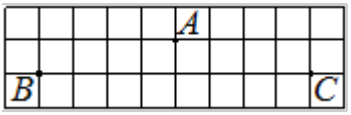

4. На клетчатой бумаге с размером клетки 1×1 отмечены три точки: A, B и C.

   Найдите расстояние от точки A до середины отрезка BC.

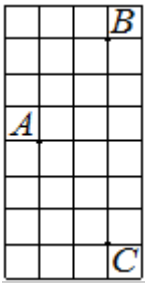

5. На клетчатой бумаге с размером клетки 1×1 отмечены три точки: A, B и C.

   Найдите расстояние от точки A до середины отрезка BC.

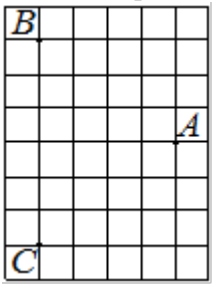

6. На клетчатой бумаге с размером клетки 1×1 отмечены три точки: A, B и C.

   Найдите расстояние от точки A до середины отрезка BC.

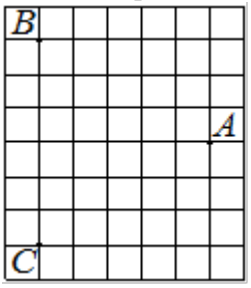

7. На клетчатой бумаге с размером клетки 1×1 отмечены три точки: A, B и C.

   Найдите расстояние от точки A до середины отрезка BC.

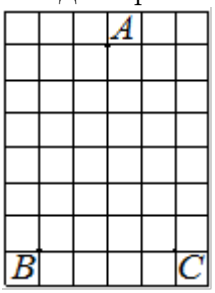

8. На клетчатой бумаге с размером клетки 1×1 отмечены три точки: A, B и C.

   Найдите расстояние от точки A до середины отрезка BC.

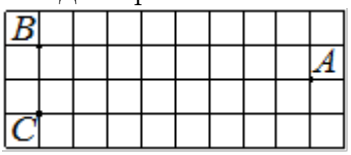

9. На клетчатой бумаге с размером клетки 1×1 отмечены три точки: A, B и C.

Найдите расстояние от точки A до середины отрезка BC.



10. На клетчатой бумаге с размером клетки 1×1 отмечены три точки: A, B и C.

Найдите расстояние от точки A до середины отрезка BC.

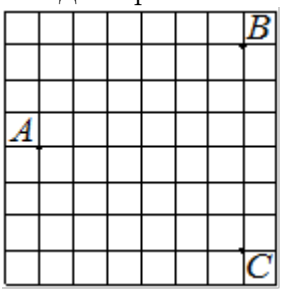

11. На клетчатой бумаге с размером клетки 1×1 отмечены три точки: A, B и C.

Найдите расстояние от точки A до середины отрезка BC.

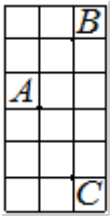

12. На клетчатой бумаге с размером клетки 1×1 отмечены три точки: A, B и C.

Найдите расстояние от точки A до середины отрезка BC.



13. На клетчатой бумаге с размером клетки 1×1 отмечены три точки: A, B и C.

Найдите расстояние от точки A до середины отрезка BC.

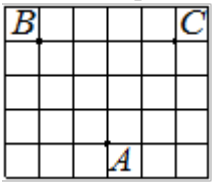

14. На клетчатой бумаге с размером клетки 1×1 отмечены три точки: A, B и C.

Найдите расстояние от точки A до середины отрезка BC.

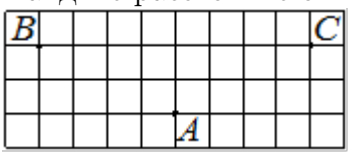

15. На клетчатой бумаге с размером клетки 1×1 отмечены три точки: A, B и C.

Найдите расстояние от точки A до середины отрезка BC.

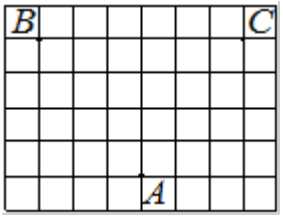

Задача 2

1. На клетчатой бумаге с размером клетки 1×1 отмечены три точки: A, B и C.

   Найдите расстояние от точки A до прямой BC.

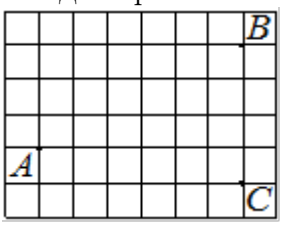

2. На клетчатой бумаге с размером клетки 1×1 отмечены три точки: A, B и C.

   Найдите расстояние от точки A до прямой BC.

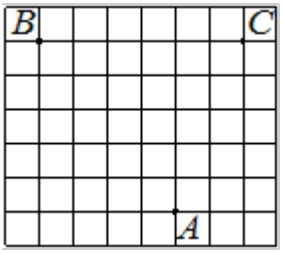

3. На клетчатой бумаге с размером клетки 1×1 отмечены три точки: A, B и C.

   Найдите расстояние от точки A до прямой BC.

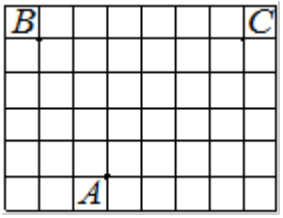

4. На клетчатой бумаге с размером клетки 1×1 отмечены три точки: A, B и C.

   Найдите расстояние от точки A до прямой BC.

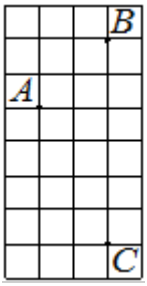

5. На клетчатой бумаге с размером клетки 1×1 отмечены три точки: A, B и C.

   Найдите расстояние от точки A до прямой BC.

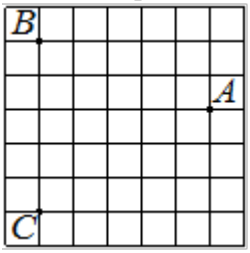

6. На клетчатой бумаге с размером клетки 1×1 отмечены три точки: A, B и C.

   Найдите расстояние от точки A до прямой BC.

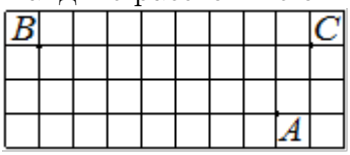

7. На клетчатой бумаге с размером клетки 1×1 отмечены три точки: A, B и C.

   Найдите расстояние от точки A до прямой BC.



8. На клетчатой бумаге с размером клетки 1×1 отмечены три точки: A, B и C.

   Найдите расстояние от точки A до прямой BC.

9. На клетчатой бумаге с размером клетки 1×1 отмечены три точки: A, B и C.

   Найдите расстояние от точки A до прямой BC.

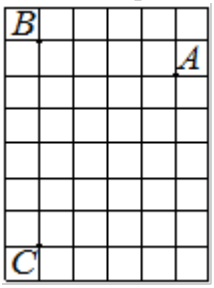

Задача 3

1. На клетчатой бумаге с размером клетки 1×1 изображен прямоугольнй треугольник.

   Найдите длину его большего катета.

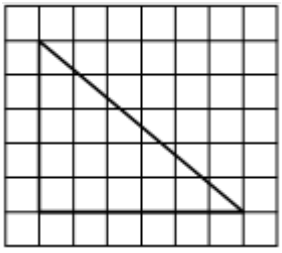

2. На клетчатой бумаге с размером клетки 1×1 изображен прямоугольнй треугольник.

   Найдите длину его большего катета.

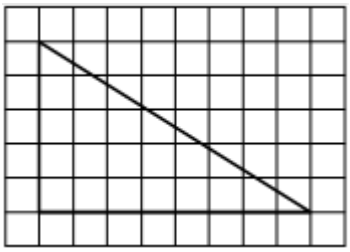

3. На клетчатой бумаге с размером клетки 1×1 изображен прямоугольнй треугольник.

   Найдите длину его большего катета.

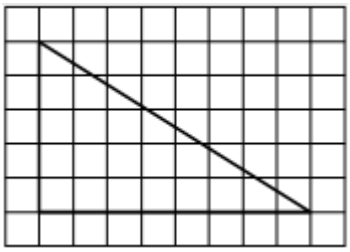

4. На клетчатой бумаге с размером клетки 1×1 изображен прямоугольнй треугольник.

   Найдите длину его большего катета.

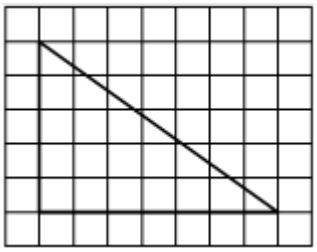

5. На клетчатой бумаге с размером клетки 1×1 изображен прямоугольнй треугольник.

   Найдите длину его большего катета.

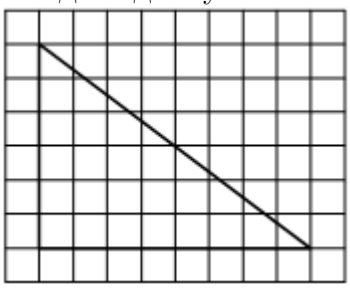

6. На клетчатой бумаге с размером клетки 1×1 изображен прямоугольнй треугольник.

   Найдите длину его большего катета.

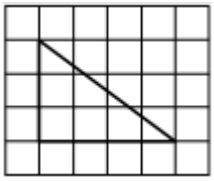

7. На клетчатой бумаге с размером клетки 1×1 изображен прямоугольнй треугольник.

   Найдите длину его большего катета.

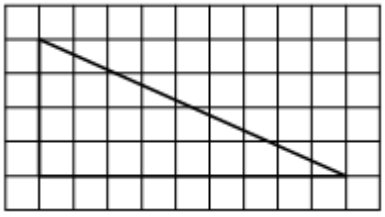

8. На клетчатой бумаге с размером клетки 1×1 изображен прямоугольнй треугольник.

   Найдите длину его большего катета.

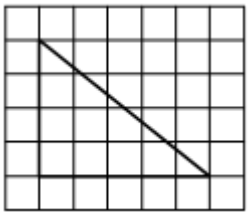

9. На клетчатой бумаге с размером клетки 1×1 изображен прямоугольнй треугольник.

   Найдите длину его большего катета.

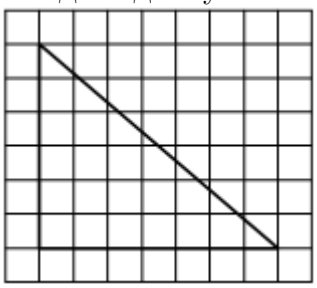

10. На клетчатой бумаге с размером клетки 1×1 изображен прямоугольнй треугольник.

    Найдите длину его большего катета.

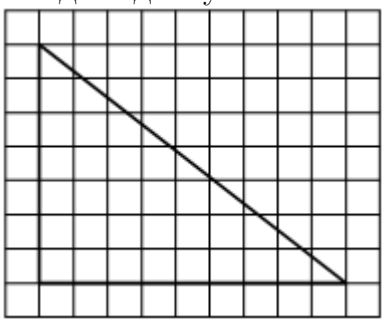

11. На клетчатой бумаге с размером клетки 1×1 изображен прямоугольнй треугольник.

    Найдите длину его большего катета.

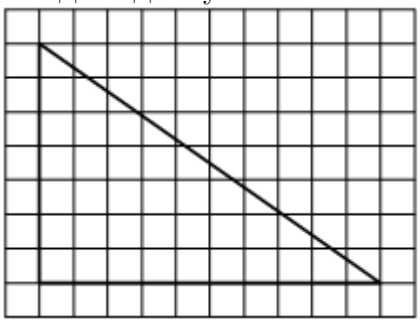

12. На клетчатой бумаге с размером клетки 1×1 изображен прямоугольнй треугольник.

    Найдите длину его большего катета.

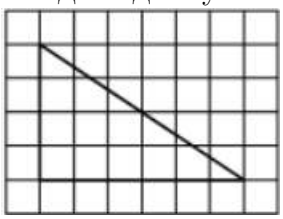

13. На клетчатой бумаге с размером клетки 1×1 изображен прямоугольнй треугольник.

Найдите длину его большего катета.

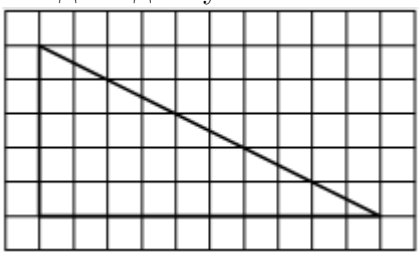

Задача 4

1. На клетчатой бумаге с размером клетки 1×1 изображен ромб. Найдите длину его большего диагонали.

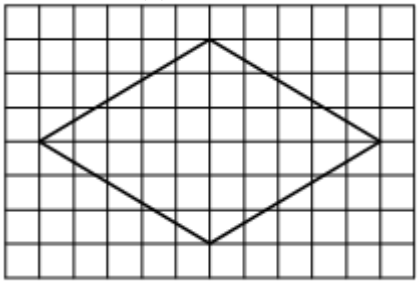

2. На клетчатой бумаге с размером клетки 1×1 изображен ромб. Найдите длину его большего диагонали.

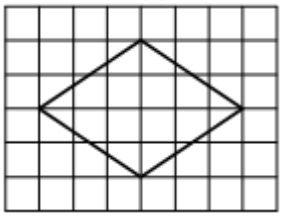

3. На клетчатой бумаге с размером клетки 1×1 изображен ромб. Найдите длину его большего диагонали.

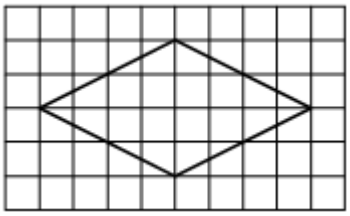

4. На клетчатой бумаге с размером клетки 1×1 изображен ромб. Найдите длину его большего диагонали.

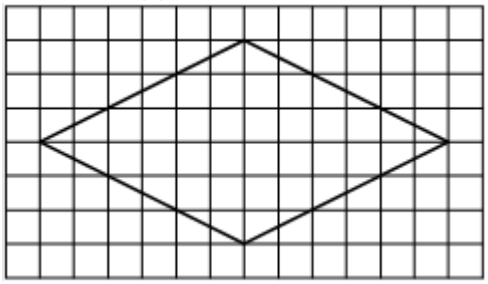

5. На клетчатой бумаге с размером клетки 1×1 изображен ромб. Найдите длину его большего диагонали.

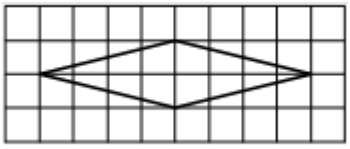

6. На клетчатой бумаге с размером клетки 1×1 изображен ромб. Найдите длину его большего диагонали.

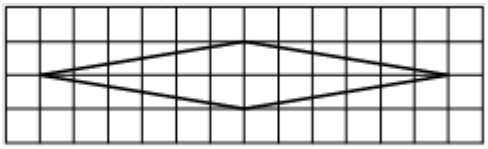

7. На клетчатой бумаге с размером клетки 1×1 изображен ромб. Найдите длину его большего диагонали.

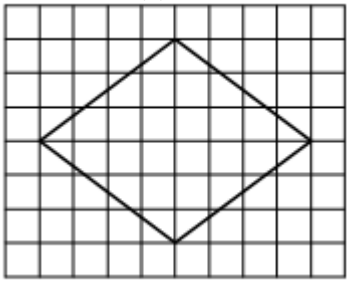

8. На клетчатой бумаге с размером клетки 1×1 изображен ромб. Найдите длину его большего диагонали.

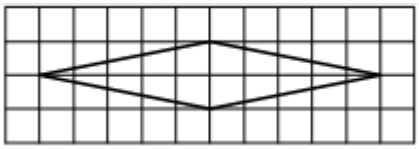

9. На клетчатой бумаге с размером клетки 1×1 изображен ромб. Найдите длину его большего диагонали.

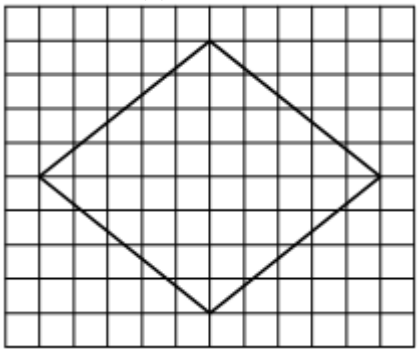

10. На клетчатой бумаге с размером клетки 1×1 изображен ромб. Найдите длину его большего диагонали.

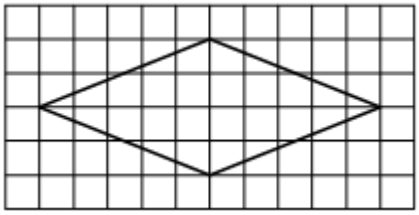

11. На клетчатой бумаге с размером клетки 1×1 изображен ромб. Найдите длину его большего диагонали.

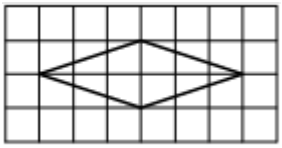

12. На клетчатой бумаге с размером клетки 1×1 изображен ромб. Найдите длину его большего диагонали.

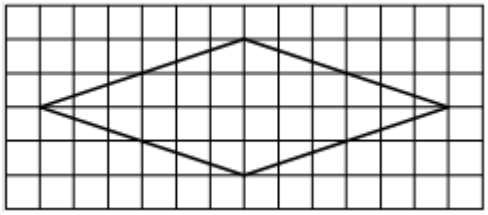

Задача 5

1. На клетчатой бумаге с размером клетки 1×1 изображена фигура. Найдите ее площадь.



2. На клетчатой бумаге с размером клетки 1×1 изображена фигура. Найдите ее площадь.



3. На клетчатой бумаге с размером клетки 1×1 изображена фигура. Найдите ее площадь.



4. На клетчатой бумаге с размером клетки 1×1 изображена фигура. Найдите ее площадь.



5. На клетчатой бумаге с размером клетки 1×1 изображена фигура. Найдите ее площадь.



6. На клетчатой бумаге с размером клетки 1×1 изображена фигура. Найдите ее площадь.



7. На клетчатой бумаге с размером клетки 1×1 изображена фигура. Найдите ее площадь.



8. На клетчатой бумаге с размером клетки 1×1 изображена фигура. Найдите ее площадь.



9. На клетчатой бумаге с размером клетки 1×1 изображена фигура. Найдите ее площадь.



10. На клетчатой бумаге с размером клетки 1×1 изображена фигура. Найдите ее площадь.



11. На клетчатой бумаге с размером клетки 1×1 изображена фигура. Найдите ее площадь.



12. На клетчатой бумаге с размером клетки 1×1 изображена фигура. Найдите ее площадь.



Задача 6

1. На клетчатой бумаге с размером клетки 1×1 изображен параллелограмм. Найдите его площадь.

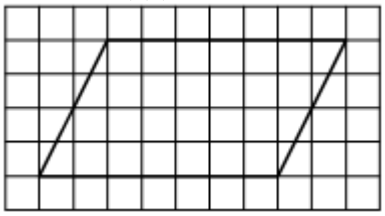

2. На клетчатой бумаге с размером клетки 1×1 изображен параллелограмм. Найдите его площадь.

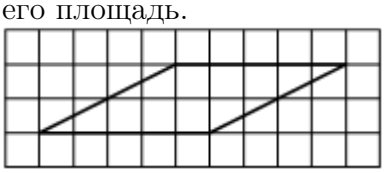

3. На клетчатой бумаге с размером клетки 1×1 изображен параллелограмм. Найдите его площадь.

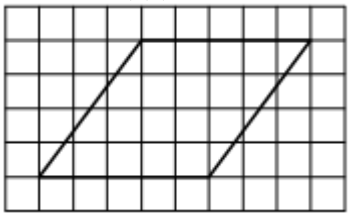

4. На клетчатой бумаге с размером клетки 1×1 изображен параллелограмм. Найдите его площадь.

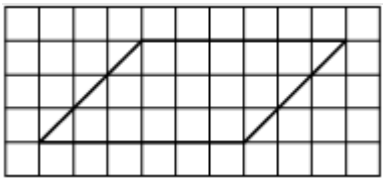

5. На клетчатой бумаге с размером клетки 1×1 изображен параллелограмм. Найдите его площадь.

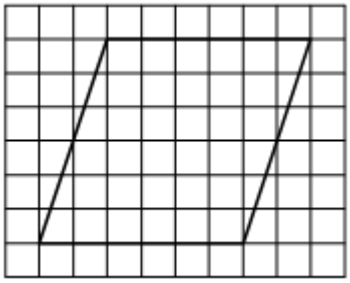

6. На клетчатой бумаге с размером клетки 1×1 изображен параллелограмм. Найдите его площадь.

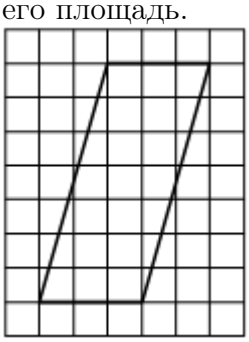

7. На клетчатой бумаге с размером клетки 1×1 изображен параллелограмм. Найдите его площадь.

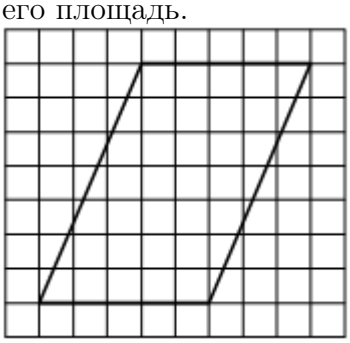

8. На клетчатой бумаге с размером клетки 1×1 изображен параллелограмм. Найдите его площадь.

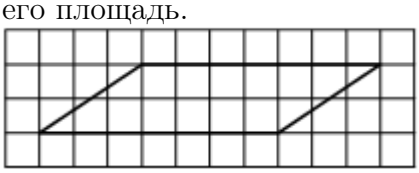

9. На клетчатой бумаге с размером клетки 1×1 изображен параллелограмм. Найдите его площадь.

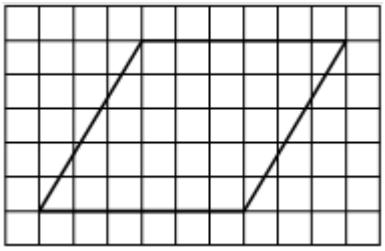

10. На клетчатой бумаге с размером клетки 1×1 изображен параллелограмм. Найдите его площадь.

11. На клетчатой бумаге с размером клетки 1×1 изображен параллелограмм. Найдите его площадь.

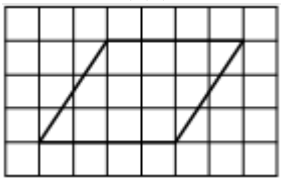

12. На клетчатой бумаге с размером клетки 1×1 изображен параллелограмм. Найдите его площадь.

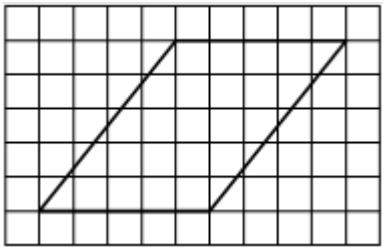

Задача 7

1. На клетчатой бумаге с размером клетки 1×1 изображен ромб. Найдите площадь этого ромба.

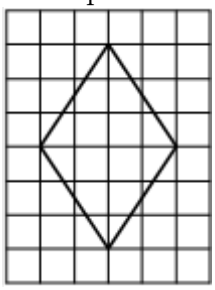

2. На клетчатой бумаге с размером клетки 1×1 изображен ромб. Найдите площадь этого ромба.

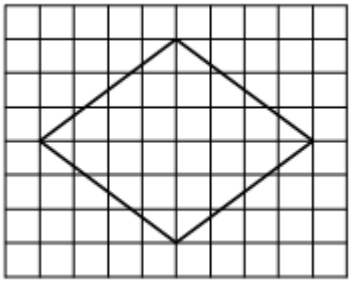

3. На клетчатой бумаге с размером клетки 1×1 изображен ромб. Найдите площадь этого ромба.

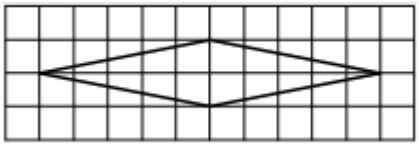

4. На клетчатой бумаге с размером клетки 1×1 изображен ромб. Найдите площадь этого ромба.

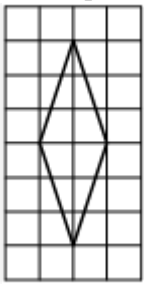

5. На клетчатой бумаге с размером клетки 1×1 изображен ромб. Найдите площадь этого ромба.

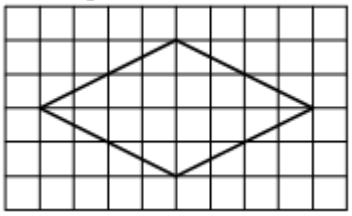

6. На клетчатой бумаге с размером клетки 1×1 изображен ромб. Найдите площадь этого ромба.

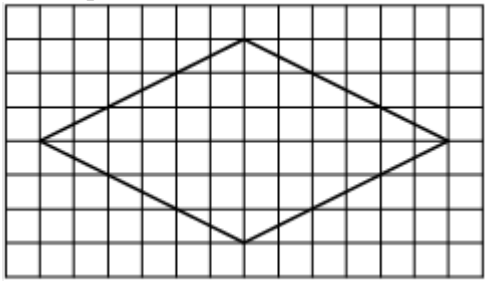

7. На клетчатой бумаге с размером клетки 1×1 изображен ромб. Найдите площадь этого ромба.

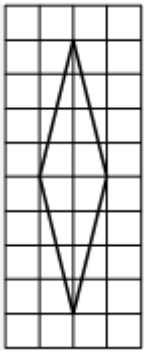

8. На клетчатой бумаге с размером клетки 1×1 изображен ромб. Найдите площадь этого ромба.

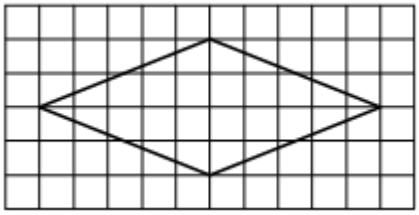

9. На клетчатой бумаге с размером клетки 1×1 изображен ромб. Найдите площадь этого ромба.

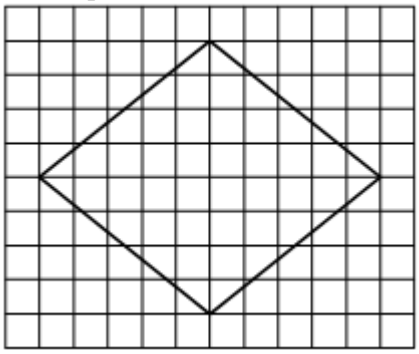

10. На клетчатой бумаге с размером клетки 1×1 изображен ромб. Найдите площадь этого ромба.

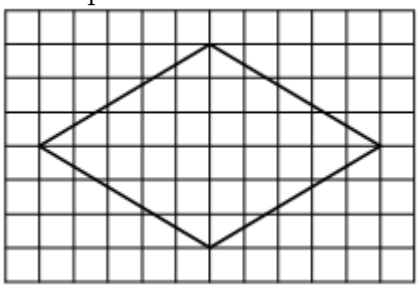

11. На клетчатой бумаге с размером клетки 1×1 изображен ромб. Найдите площадь этого ромба.

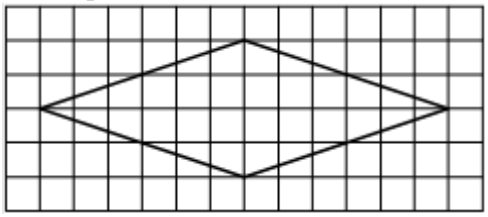

12. На клетчатой бумаге с размером клетки 1×1 изображен ромб. Найдите площадь этого ромба.

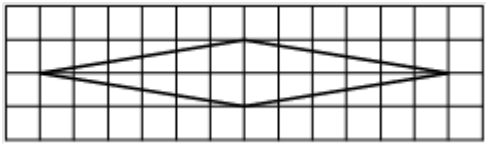

Задача 8

1. На клетчатой бумаге с размером клетки 1×1 изображен треугольник. Найдите площадь этого треугольника.

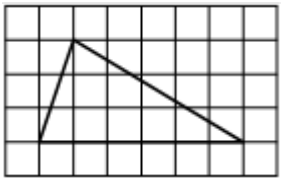

2. На клетчатой бумаге с размером клетки 1×1 изображен треугольник. Найдите площадь этого треугольника.

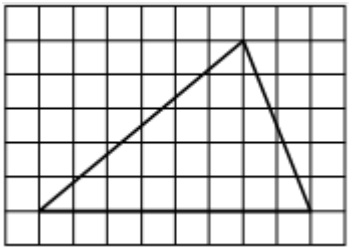

3. На клетчатой бумаге с размером клетки 1×1 изображен треугольник. Найдите площадь этого треугольника.

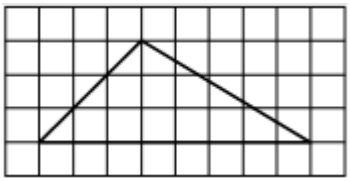

4. На клетчатой бумаге с размером клетки 1×1 изображен треугольник. Найдите площадь этого треугольника.

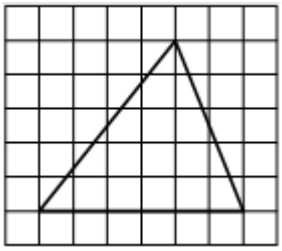

5. На клетчатой бумаге с размером клетки 1×1 изображен треугольник. Найдите площадь этого треугольника.

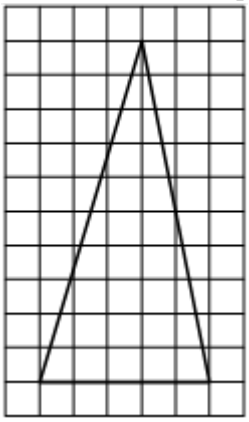

6. На клетчатой бумаге с размером клетки 1×1 изображен треугольник. Найдите площадь этого треугольника.

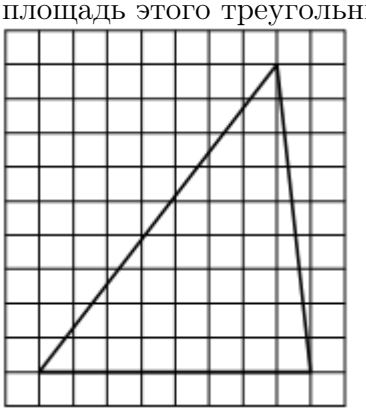

7. На клетчатой бумаге с размером клетки 1×1 изображен треугольник. Найдите площадь этого треугольника.

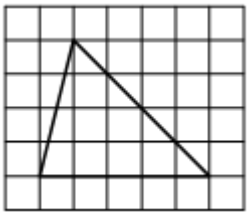

8. На клетчатой бумаге с размером клетки 1×1 изображен треугольник. Найдите площадь этого треугольника.

9. На клетчатой бумаге с размером клетки 1×1 изображен треугольник. Найдите площадь этого треугольника.

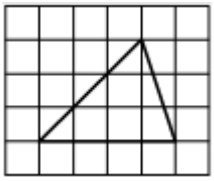

10. На клетчатой бумаге с размером клетки 1×1 изображен треугольник. Найдите площадь этого треугольника.

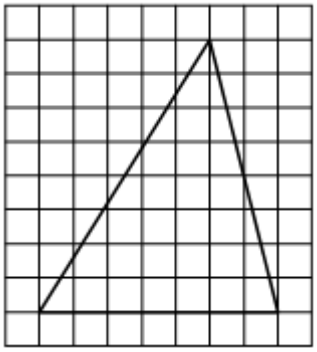

11. На клетчатой бумаге с размером клетки 1×1 изображен треугольник. Найдите площадь этого треугольника.

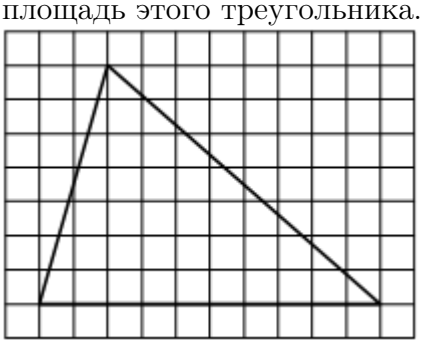

12. На клетчатой бумаге с размером клетки 1×1 изображен треугольник. Найдите площадь этого треугольника.

Задача 9

1. На клетчатой бумаге с размером клетки 1×1 изображена трапеция. Найдите площадь этой трапеции.

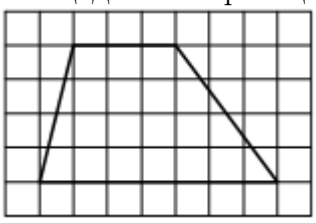

2. На клетчатой бумаге с размером клетки 1×1 изображена трапеция. Найдите площадь этой трапеции.

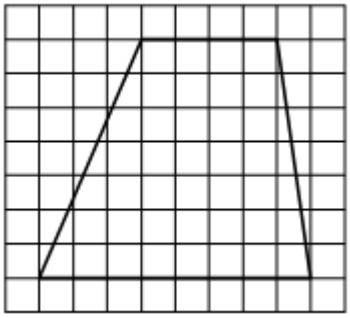

3. На клетчатой бумаге с размером клетки 1×1 изображена трапеция. Найдите площадь этой трапеции.

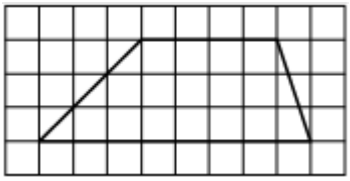

4. На клетчатой бумаге с размером клетки 1×1 изображена трапеция. Найдите площадь этой трапеции.

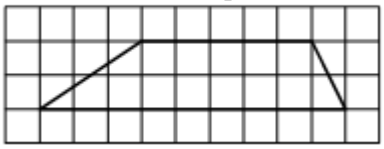

5. На клетчатой бумаге с размером клетки 1×1 изображена трапеция. Найдите площадь этой трапеции.

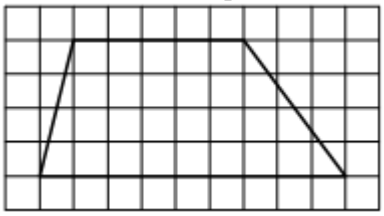

6. На клетчатой бумаге с размером клетки 1×1 изображена трапеция. Найдите площадь этой трапеции.

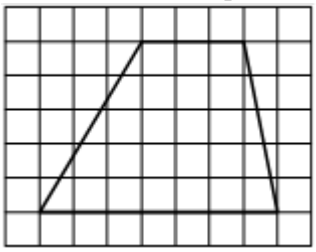

7. На клетчатой бумаге с размером клетки 1×1 изображена трапеция. Найдите площадь этой трапеции.

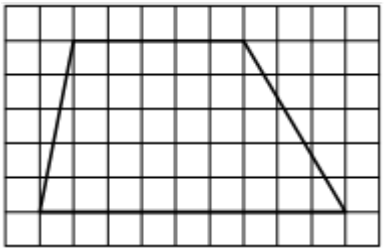

8. На клетчатой бумаге с размером клетки 1×1 изображена трапеция. Найдите площадь этой трапеции.

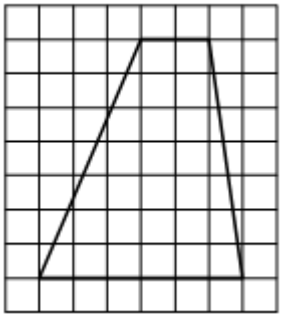

9. На клетчатой бумаге с размером клетки 1×1 изображена трапеция. Найдите площадь этой трапеции.

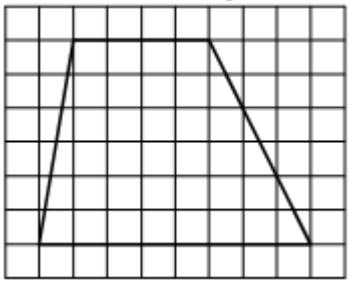

10. На клетчатой бумаге с размером клетки 1×1 изображена трапеция. Найдите площадь этой трапеции.

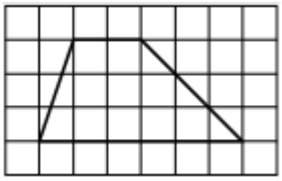

11. На клетчатой бумаге с размером клетки 1×1 изображена трапеция. Найдите площадь этой трапеции.

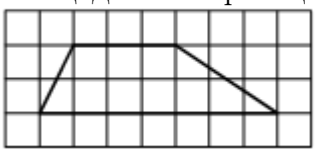

12. На клетчатой бумаге с размером клетки 1×1 изображена трапеция. Найдите площадь этой трапеции.

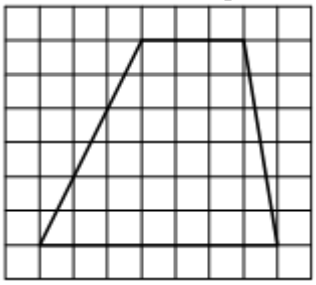

Задача 10

1. На клетчатой бумаге с размером клетки 1×1 изображен треугольник. Найдите длину его средней линии, параллельной стороне AC.

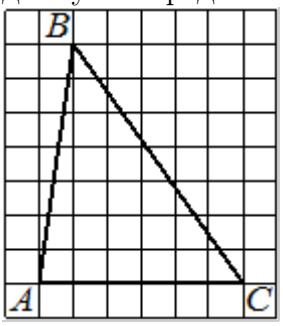

2. На клетчатой бумаге с размером клетки 1×1 изображен треугольник. Найдите длину его средней линии, параллельной стороне AC.

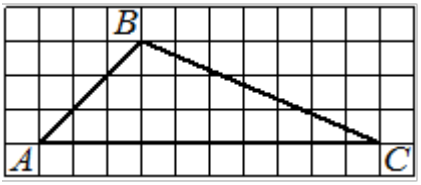

3. На клетчатой бумаге с размером клетки 1×1 изображен треугольник. Найдите длину его средней линии, параллельной стороне AC.

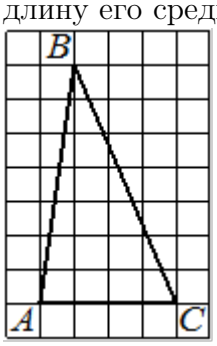

4. На клетчатой бумаге с размером клетки 1×1 изображен треугольник. Найдите длину его средней линии, параллельной стороне AC.

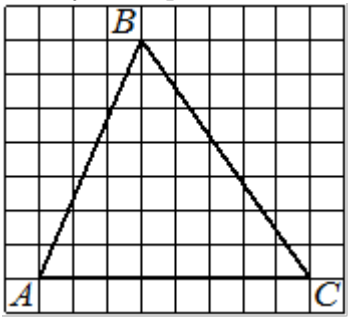

5. На клетчатой бумаге с размером клетки 1×1 изображен треугольник. Найдите длину его средней линии, параллельной стороне AC.

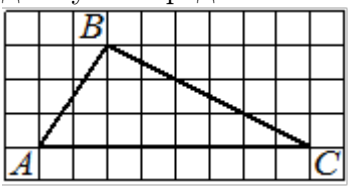

6. На клетчатой бумаге с размером клетки 1×1 изображен треугольник. Найдите длину его средней линии, параллельной стороне AC.

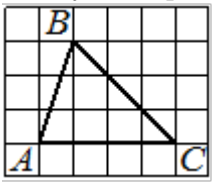

7. На клетчатой бумаге с размером клетки 1×1 изображен треугольник. Найдите длину его средней линии, параллельной стороне AC.

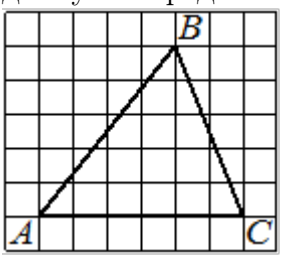

8. На клетчатой бумаге с размером клетки 1×1 изображен треугольник. Найдите длину его средней линии, параллельной стороне AC.

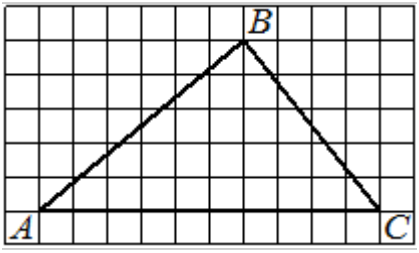

9. На клетчатой бумаге с размером клетки 1×1 изображен треугольник. Найдите длину его средней линии, параллельной стороне AC.

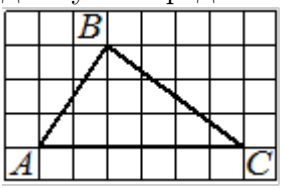

10. На клетчатой бумаге с размером клетки 1×1 изображен треугольник. Найдите длину его средней линии, параллельной стороне AC.

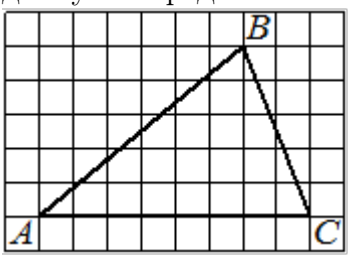

11. На клетчатой бумаге с размером клетки 1×1 изображен треугольник. Найдите длину его средней линии, параллельной стороне AC.

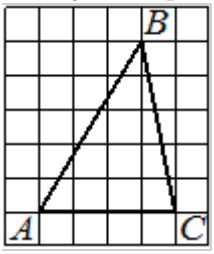

12. На клетчатой бумаге с размером клетки 1×1 изображен треугольник. Найдите длину его средней линии, параллельной стороне AC.

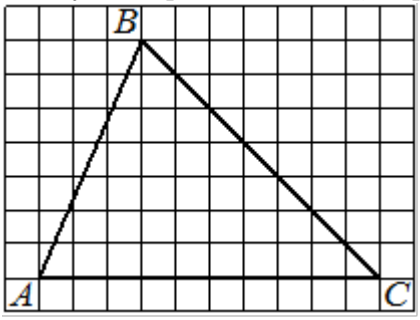

Задача 11

1. На клетчатой бумаге с размером клетки 1×1 изображена трапеция. Найдите длину ее средней линии.

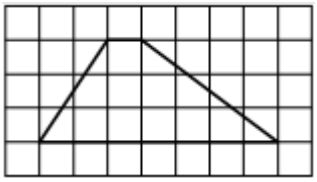

2. На клетчатой бумаге с размером клетки 1×1 изображена трапеция. Найдите длину ее средней линии.

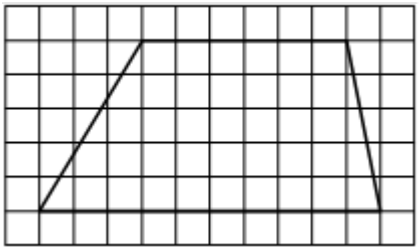

3. На клетчатой бумаге с размером клетки 1×1 изображена трапеция. Найдите длину ее средней линии.

4. На клетчатой бумаге с размером клетки 1×1 изображена трапеция. Найдите длину ее средней линии.

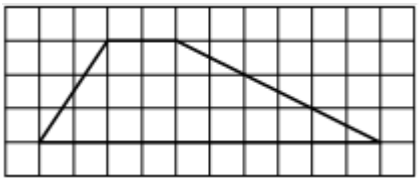

5. На клетчатой бумаге с размером клетки 1×1 изображена трапеция. Найдите длину ее средней линии.

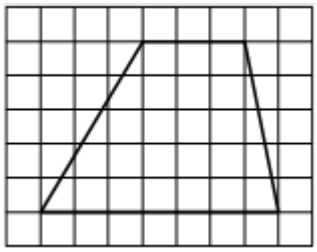

6. На клетчатой бумаге с размером клетки 1×1 изображена трапеция. Найдите длину ее средней линии.

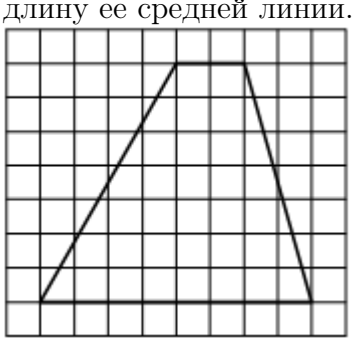

7. На клетчатой бумаге с размером клетки 1×1 изображена трапеция. Найдите длину ее средней линии.

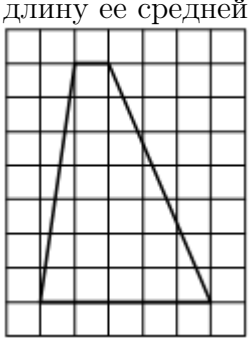

8. На клетчатой бумаге с размером клетки 1×1 изображена трапеция. Найдите длину ее средней линии.

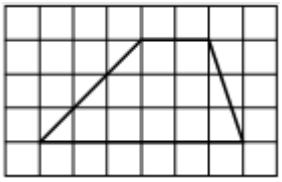

9. На клетчатой бумаге с размером клетки 1×1 изображена трапеция. Найдите длину ее средней линии.

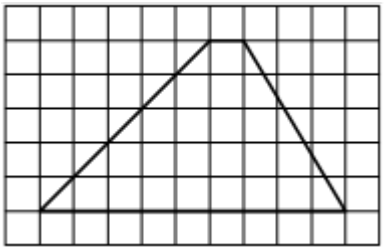

10. На клетчатой бумаге с размером клетки 1×1 изображена трапеция. Найдите длину ее средней линии.

11. На клетчатой бумаге с размером клетки 1×1 изображена трапеция. Найдите длину ее средней линии.

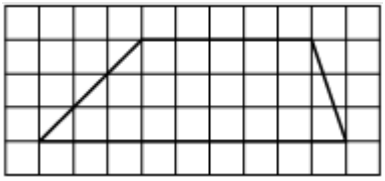

12. На клетчатой бумаге с размером клетки 1×1 изображена трапеция. Найдите длину ее средней линии.

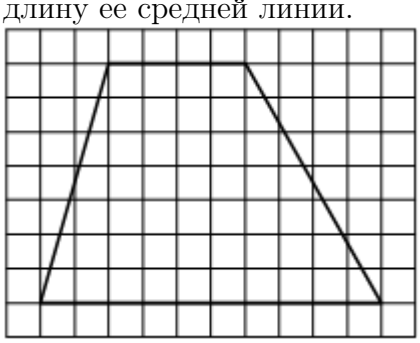

Задача 12

1. Найдите тангенс угла AOB, изображенного на рисунке.

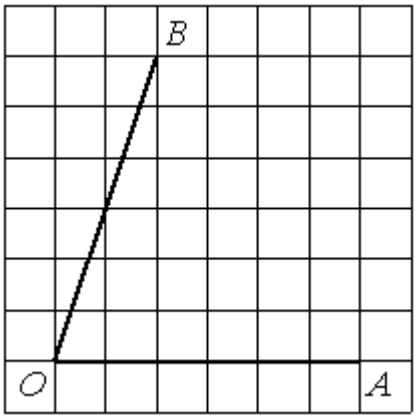

2. Найдите тангенс угла AOB, изображенного на рисунке.

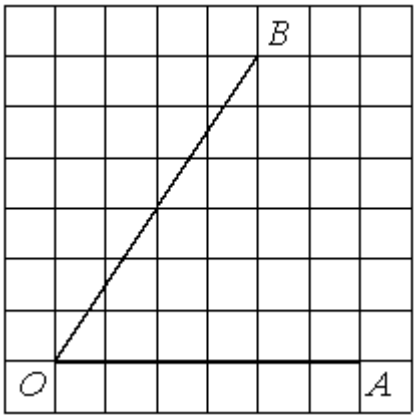

3. Найдите тангенс угла AOB, изображенного на рисунке.

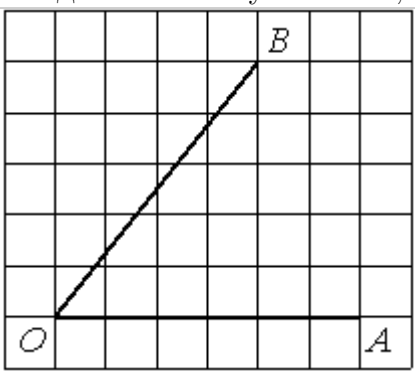

4. Найдите тангенс угла AOB, изображенного на рисунке.

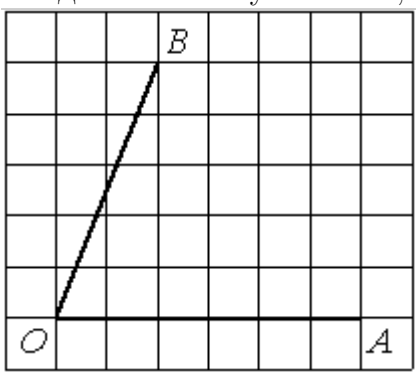

5. Найдите тангенс угла AOB, изображенного на рисунке.

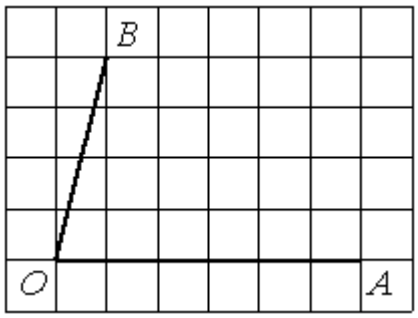

6. Найдите тангенс угла AOB, изображенного на рисунке.

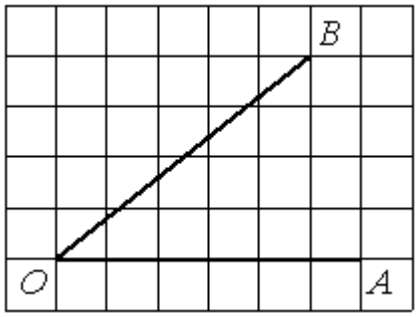

7. Найдите тангенс угла AOB, изображенного на рисунке.

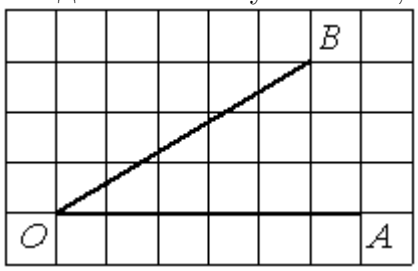

8. Найдите тангенс угла AOB, изображенного на рисунке.

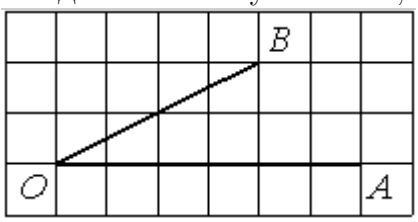

9. Найдите тангенс угла AOB, изображенного на рисунке.

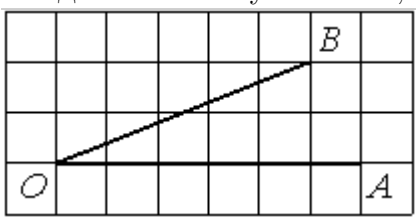

10. Найдите тангенс угла AOB, изображенного на рисунке.

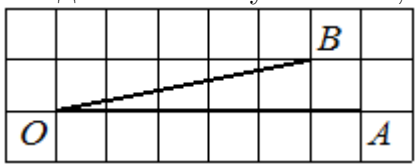

11. Найдите тангенс угла AOB, изображенного на рисунке.

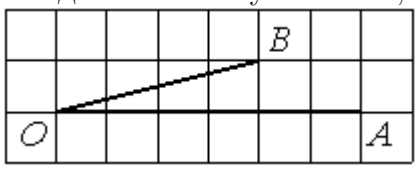

Ответы

Задача 1

1. 3
2. 5
3. 1
4. 2
5. 4
6. 5
7. 6
8. 8
9. 7
10. 6
11. 1
12. 7
13. 3
14. 2
15. 4

Задача 2

1. 6
2. 5
3. 4
4. 2
5. 5
6. 2
7. 7
8. 1
9. 4

Задача 3

1. 6
2. 8
3. 8
4. 7
5. 8
6. 4
7. 9
8. 5
9. 7
10. 10
11. 6
12. 10

Задача 4

1. 10
2. 6
3. 8
4. 12
5. 8
6. 12
7. 8
8. 10
9. 10
10. 10
11. 6
12. 12

Задача 5

1. 14
2. 8
3. 15
4. 10
5. 13
6. 16
7. 9
8. 17
9. 19
10. 18
11. 12
12. 11

Задача 6

1. 28
2. 10
3. 20
4. 18
5. 36
6. 21
7. 35
8. 14
9. 30
10. 42
11. 12
12. 25

Задача 7

1. 12
2. 24
3. 10
4. 6
5. 16
6. 36
7. 8
8. 20
9. 40
10. 30
11. 24
12. 12

Задача 8

1. 9
2. 20
3. 12
4. 15
5. 25
6. 36
7. 10
8. 21
9. 6
10. 28
11. 35
12. 14

Задача 9

1. 20
2. 42
3. 18
4. 14
5. 28
6. 25
7. 35
8. 28
9. 36
10. 12
11. 10
12. 30

Задача 10

1. 3
2. 5
3. 2
4. 4
5. 4
6. 2
7. 3
8. 5
9. 3
10. 4
11. 2
12. 5

Задача 11

1. 4
2. 8
3. 6
4. 6
5. 5
6. 5
7. 3
8. 4
9. 5
10. 6
11. 7
12. 7

Задача 12

1. 3
2. 1,5
3. 1,25
4. 2,5
5. 4
6. 0,8
7. 0,6
8. 0,5
9. 0,4
10. 0,2
11. 0,25